QUESTÃO 21

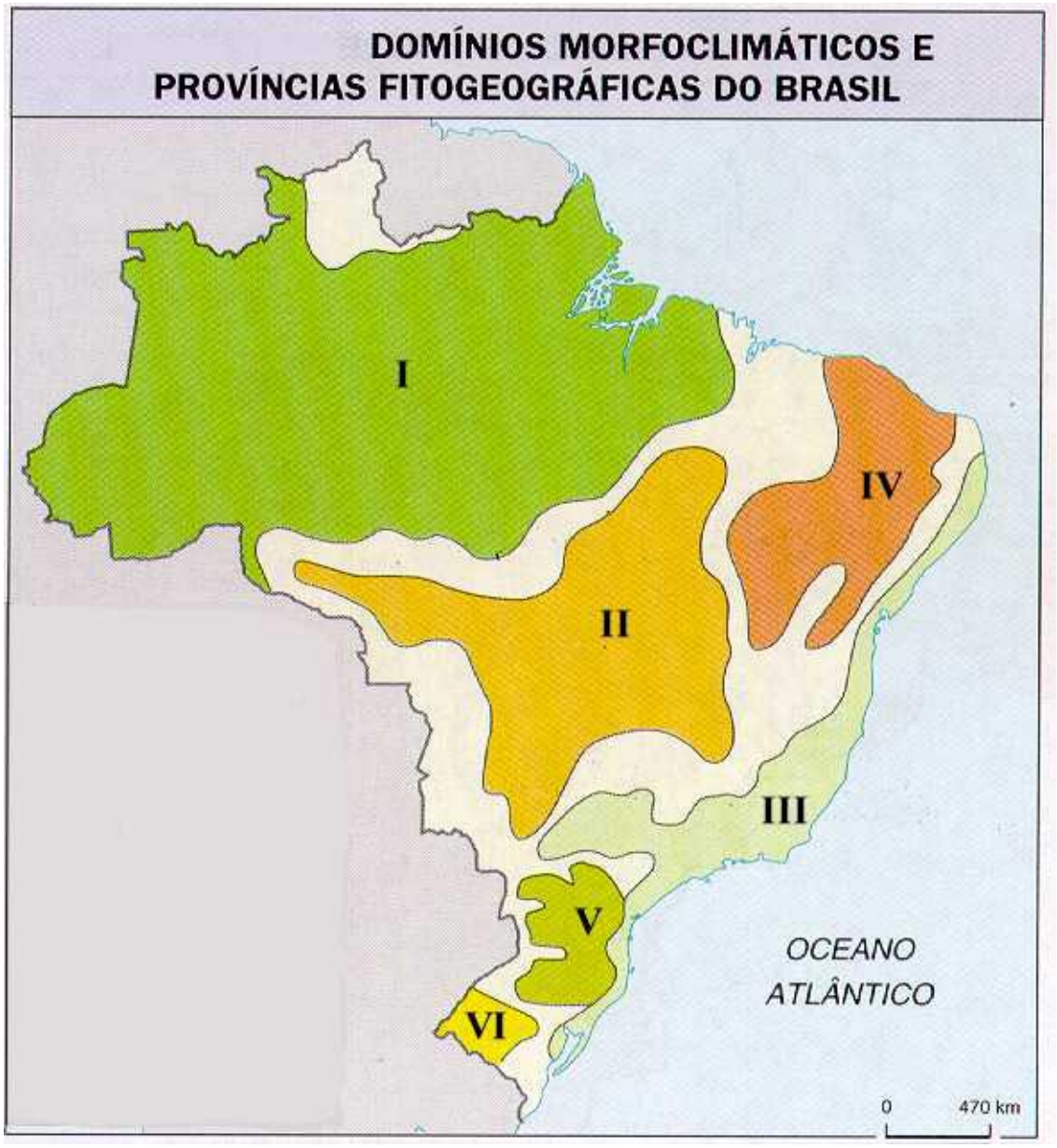

ADAS, M. *Panorama geográfico do Brasil*. São Paulo: Moderna, 1998.

Assinale o Domínio Morfoclimático correspondente à numeração apresentada no mapa e indique a seqüência correta, segundo as alternativas.

( ) Planaltos e chapadas interiores com clima tropical e cobertura de cerrado e matas-de-galeria.
( ) Planaltos com clima subtropical e cobertura de matas de araucárias.
( ) Mares de morros com clima tropical a subtropical e cobertura da Mata Atlântica.
( ) Depressões intermontanas e interplanálticas semi-áridas com cobertura de caatingas.
( ) Coxilhas subtropicais recobertas por pradarias mistas.
( ) Terras baixas, florestas equatoriais.

A) III, V, II, I, IV, VI
B) II, V, III, IV, VI, I
C) II, V, III, VI, IV, I
D) I, VI, IV, III, V, II

QUESTÃO 22

O Código Florestal Brasileiro (Lei No 4.771 de 15/09/1965) é o instrumento de proteção ambiental, utilizado para regular o uso do solo no território nacional, que considera que

I- as encostas ou parte destas com declividade superior a 45º (quarenta e cinco graus), equivalente a 100% na linha de maior declive, são Áreas de Preservação Permanente.
II- a definição do tamanho das Áreas de Preservação Permanente, ao longo das margens dos córregos e rios, deve ficar a critério dos proprietários rurais.
III- o entorno das nascentes deve ser protegido com a preservação integral da vegetação natural, num raio mínimo de 50 metros, qualquer que seja sua situação topográfica.
IV- os ecossistemas específicos relacionados aos manguezais e restingas são enquadrados nas Áreas de Preservação Permanente.
V- O código florestal brasileiro não considera as terras altas como Áreas de Preservação Permanente.

Assinale a alternativa correta.

A) III, IV e V estão corretas
B) I, II e IV estão corretas.
C) I, III e IV estão corretas.
D) II, III e IV estão corretas.

QUESTÃO 23

Numere a coluna da direita de acordo com a da esquerda e, em seguida, assinale a alternativa que contém a seqüência correta.

1 – Bacia do Paraná	( )	exploração de petróleo
2 – Bacia de Campos	( )	produção de chá
3 – Pantanal	( )	terra-roxa
4 – Bacia do Ribeira de Iguape	( )	turismo – pesca esportiva
5 – Bacia do Paraíba do Sul	( )	concentração industrial
	( )	pecuária extensiva
	( )	produção de hidroeletricidade

A) 1 – 2 – 3 – 4 – 5 – 1 – 2
B) 4 – 1 – 2 – 3 – 5 – 3 – 4
C) 2 – 4 – 1 – 3 – 1 – 5 – 1
D) 2 – 4 – 1 – 3 – 5 – 3 – 1

QUESTÃO 24

VOLUME DE ÁGUA NO PLANETA (Milhões de Km^3)

Reservatório	**Volume**	**%**
Oceanos e mares	1.370,0	97,25
Calotas polares e geleiras	29,0	2,05
Águas subterrâneas profundas*	5,3	0,38
Águas subterrâneas superficiais**	4,2	0,30
Lagos	0,125	0,01
Umidade dos solos	0,065	0,005
Atmosfera	0,013	0,001
Rios	0,0017	0,0001
Biosfera	0,0006	0,00004
TOTAL	**1.408,7**	**100**

* Entre 750 e 4.000 metros de profundidade

** Até 750 metros de profundidade

Adaptado de BERNER, E. K. & BERNER, R. A. *The Global Water Cycle: Geochemistry and Environment.* Prentice Hall, Englewood Cliffs, 1987.

Considerando os dados da tabela acima, é correto afirmar que

A) as águas contidas nas calotas polares e nas geleiras não são adequadas ao consumo humano, pois encontram-se altamente poluídas pelas atividades industriais.

B) a quantidade de água doce acessível à humanidade é restrita às águas subterrâneas superficiais e às águas dos lagos e dos rios.

C) a água contida na atmosfera encontra-se apenas no estado de vapor e, por isso, não pode ser utilizada para o consumo humano.

D) a maior parte das águas do planeta corresponde às águas salgadas dos oceanos e mares, ocupando cerca de 1/3 da superfície da Terra.

QUESTÃO 25

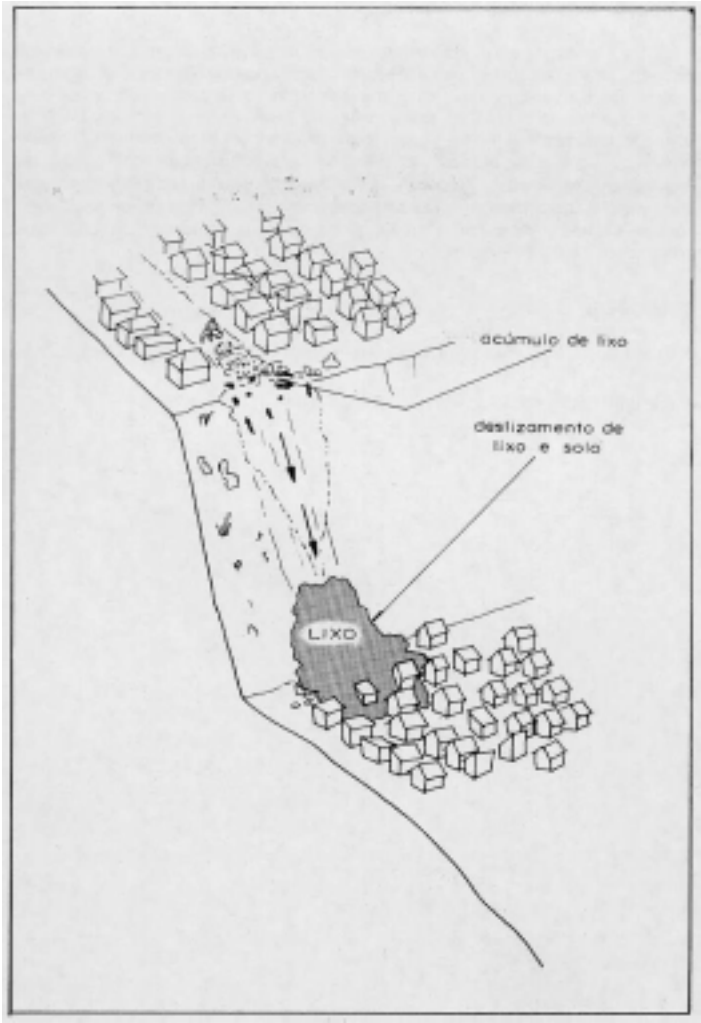

ANGELIERI, M.C., *Manual de ocupação de encostas*. São Paulo. IPT Instituto de Pesquisas Tecnológicas. 1991. p.60

A respeito do quadro acima, pode-se dizer que

I- o lixo é um material muito fofo e de alta porosidade, o que permite sua rápida saturação com a água e seu excessivo aumento de peso, facilitando seu escorregamento.
II- os escorregamentos tornam-se mais graves quando o lixo é lançado, juntamente com as águas servidas, nas linhas de drenagem natural.
III- a deposição de lixo nas encostas é recomendado, pois melhora as condições de estabilidade dos solos.
IV- é desejável a deposição de lixo próximo aos bairros de baixa renda, uma vez que é no lixo que os animais domésticos, como porcos e galinhas, vão se alimentar.
V- a definição de locais apropriados para a deposição do lixo e a implantação de serviço público de coleta são medidas adequadas de saneamento.

Assinale a alternativa correta.

A) I, II e V estão corretas.
B) I , II e IV estão corretas.
C) II, III e V estão corretas.
D) II, IV e V estão corretas.

QUESTÃO 26

Quanto ao modelo industrial brasileiro, é possível afirmar que

I- utiliza principalmente tecnologia desenvolvida no exterior nos processos produtivos.
II- tem, como base, empresas de capital estrangeiro, as chamadas transnacionais.
III- usa intensamente mão-de-obra de baixa remuneração em suas linhas de produção.
IV- é dominado pela produção das indústrias de base, em detrimento dos bens de consumo.

Assinale a alternativa correta.

A) I, III e IV estão corretas.
B) I, II e IV estão corretas.
C) I, II e III estão corretas.
D) II, III e IV estão corretas.

QUESTÃO 27

Observe o gráfico abaixo.

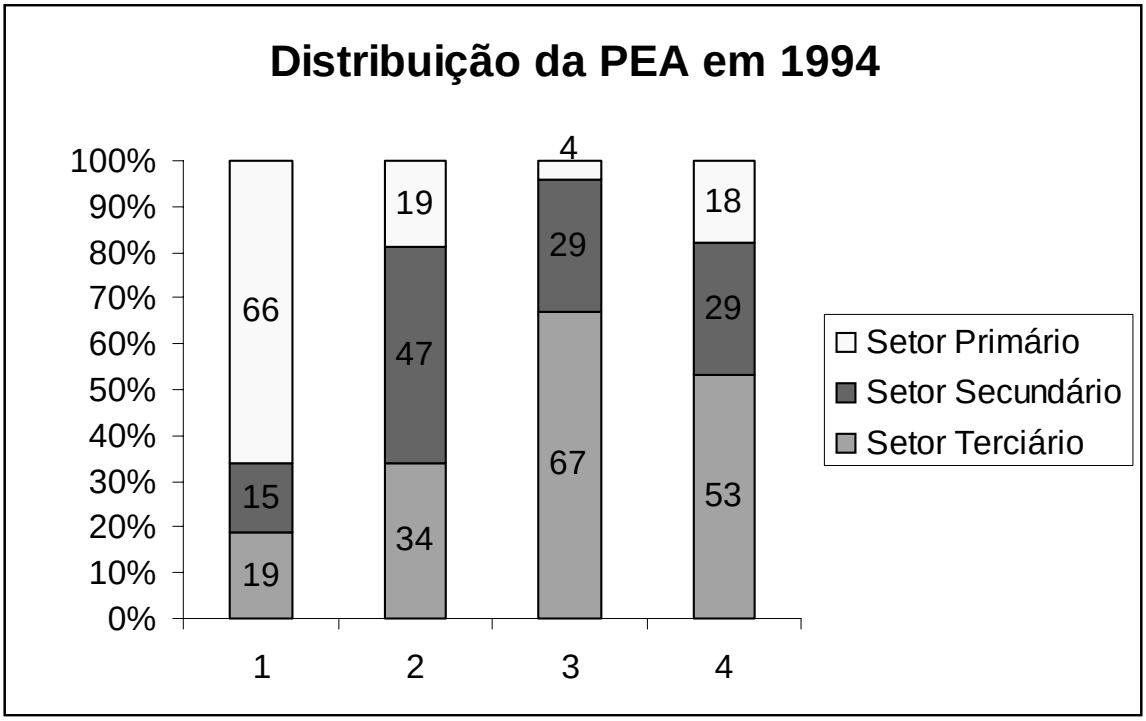

Adaptado de: ARAÚJO, R. e MAGNOLI, D. *Geografia*: Paisagem e Território. 2.ed. São Paulo: Moderna, 1997.

Relacione as colunas do gráfico com os países a seguir:

( ) Chile
( ) Índia
( ) Hungria
( ) França

A) 1, 2, 3, 4
B) 3, 4, 1, 2
C) 2, 3, 4, 1
D) 4, 1, 2, 3

QUESTÃO 28

Os séculos de expansão colonialista da Inglaterra legaram ao mundo uma série de conflitos geopolíticos, resultantes das incorporações e seccionamentos territoriais e de transferências populacionais forçadas para atender aos interesses econômicos do Império.

Assinale a alternativa que **NÃO** está relacionada aos conflitos resultantes da ação britânica.

A) A transferência de africanos como escravos para as plantações no Haiti.
B) A introdução de proprietários protestantes no Norte da Irlanda.
C) O uso de tâmeis vindos da Índia nas plantações de chá do Ceilão.
D) A criação de territórios para palestinos e israelenses no Oriente Médio.

QUESTÃO 29

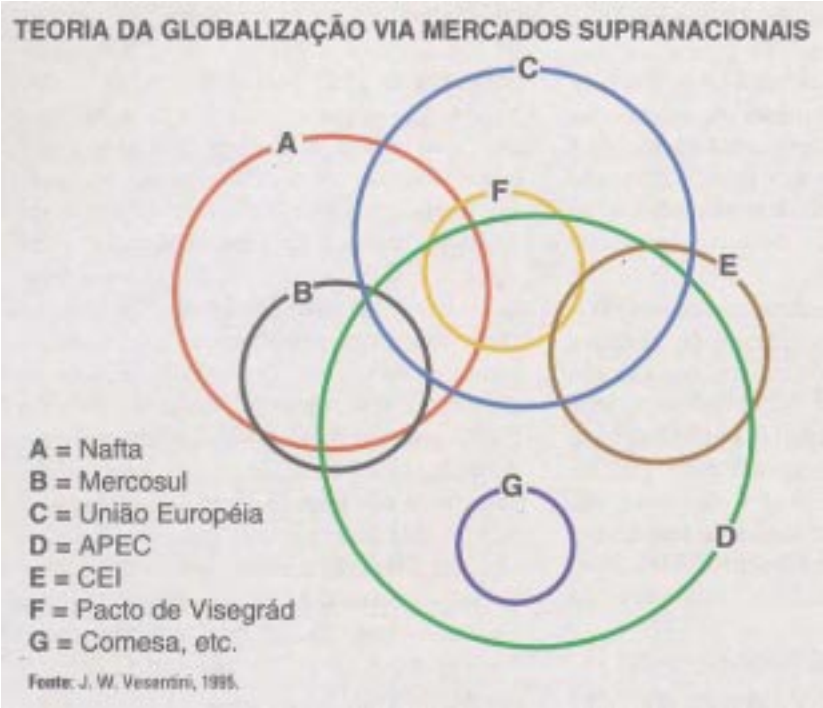

Adaptado de VESENTINI, J.W., 1996.

I- Antes de isolar os blocos, o mercado mundial caminha para uma maior integração.
II- Os blocos regionais podem ser considerados como etapas no processo de globalização comercial.
III- Blocos regionais podem significar o fortalecimento das economias desses blocos ante a mundialização.
IV- Os mercados regionais são dificultadores do processo de globalização econômica.

A respeito das assertivas acima assinale a alternativa correta.

A) I, II e IV estão corretas.
B) I, II e III estão corretas.
C) I, III e IV estão corretas.
D) II, III e IV estão corretas.

QUESTÃO 30

"O IDH (Índice de Desenvolvimento Humano) é um indicador elaborado pela ONU que mede a qualidade de vida das pessoas de 174 países no mundo todo (...) O IDH se baseia no fato de que o desenvolvimento de uma nação não pode ser medido de uma forma unilateral, levando-se em conta somente a dimensão econômica".

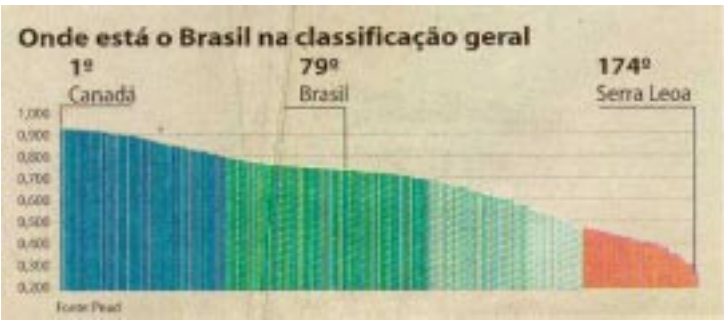

In: *Folha de São Paulo*. 11/07/1999.

Quanto à posição brasileira no ranking do IDH, é **INCORRETO** afirmar que

A) o crescimento do PIB tem sido maior que o Índice de Desenvolvimento Humano.
B) apesar do crescimento dos últimos anos, os indicadores de educação ainda são insatisfatórios.
C) o pior desempenho brasileiro para o ranqueamento é referente aos indicadores de saúde.
D) a distribuição de renda tem melhorado com o crescimento do Produto Interno Bruto.