QUESTÃO 21

Localidades com altitudes semelhantes, mas situadas em diferentes regiões brasileiras.			
Localidade	**Total médio das chuvas anuais (mm)**	**Temperatura média em janeiro (^oC)**	**Temperatura média em julho (^oC)**
1	2.380	27.1	27.2
2	1.420	26.1	9.4
3	810	24.3	22.7

I- A localidade 2 situa-se em região de floresta tropical.
II- As localidades 1 e 3 estão na região tropical, sendo a 1 na Amazônia e a 2 no sertão nordestino.
III- A elevada amplitude térmica da localidade 2 indica que ela situa-se em latitude subtropical.
IV- A localidade 3 situa-se ao sul da localidade 2.
V- A localidade 1 situa-se em latitude inferior à da localidade 2.

É correto afirmar que

A) I, II e III são verdadeiras.
B) II, III e V são verdadeiras.
C) II, IV e V são verdadeiras.
D) III, IV e V são verdadeiras.

QUESTÃO 22

Do ponto de vista geoeconômico, a inauguração de uma nova divisão internacional do trabalho na economia mundial está relacionada

I- à globalização financeira, estreitamente ligada à supremacia do dólar.
II- à aparição do Japão como potência tecnológica, financeira e comercial, que diante das crises dos anos 90 apresentou-se como o único desafio econômico à hegemonia dos EUA.
III- à integração do espaço europeu com pretensões a tornar-se um bloco econômico capaz de fazer frente à preponderância norte-americana.
IV- ao fim da submissão dos países periféricos à nova ordem global, marcado pelo crescimento industrial e pelo equilíbrio financeiro, em particular da América Latina e do Leste Europeu.

É correto afirmar que

A) I, II e III são verdadeiras.
B) I, II e IV são verdadeiras.
C) II, III e IV são verdadeiras.
D) Somente I e III são verdadeiras.

QUESTÃO 23

O consumo de trigo no Brasil, estimado para o ano 2.000, é de aproximadamente 9,5 milhões de toneladas, com cerca de 57,6 Kg por habitante.

TRIGO NO BRASIL – Produção, Área e Produtividade.

	1990	**1991**	**1992**	**1993**	**1994**	**1995**	**1996**	**1997**	**1998**	**1999**	**2000***
Produção (1000 t)	3094	2917	2796	2197	2096	1534	3293	2489	2190	2400	2100
Área Colhida (1000 ha)	2681	2050	1956	1482	1394	995	1796	1522	1370	1250	1160
Produtividade (Kg/ha)	1154	1423	1429	1482	1554	1542	1884	1635	1598	1920	1810

* Estimativa

Fonte: IBGE. Sistema IBGE de Recuperação Automática (1990/97)
Folha de São Paulo. Agrofolha. 21 de março de 2000 (1998/00)

I- A produtividade média da cultura do trigo no Brasil pode ser colocada no mesmo nível daquelas que se verificam nos países de grande produção, como a Argentina, o Canadá e os Estados Unidos da América.

II- Os Estados que mais produzem trigo no Brasil são os da Região Centro Sul, por apresentarem condições naturais de clima, solo e relevo mais apropriadas em relação às demais regiões brasileiras.

III- A triticultura irrigada na região dos cerrados do Brasil Central pode apresentar elevados índices de produtividade, mas os preços alcançados pelos produtores não são compensadores.

IV- Durante a década de 90 a área colhida de trigo no Brasil cresceu em função dos estímulos financeiros e tecnológicos oferecidos aos produtores pelo governo brasileiro.

V- Embora o mercado interno esteja em expansão, a competitividade comercial da triticultura brasileira é comprometida pela ausência de incentivos por parte do governo e pela competição com os grandes produtores internacionais.

É correto afirmar que

A) I, III e IV são verdadeiras.
B) I, II e III são verdadeiras.
C) II, III e IV são verdadeiras.
D) II, III e V são verdadeiras.

QUESTÃO 24

"Para que se forme uma jazida petrolífera economicamente explorável são necessárias as seguintes condições: existência de rochas geradoras; condições propícias à transformação química e bioquímica dos componentes orgânicos em hidrocarbonetos; ocorrência de processos migratórios; existência de rocha reservadora com boa porosidade e boa permeabilidade; e existência de estruturas acumuladoras".

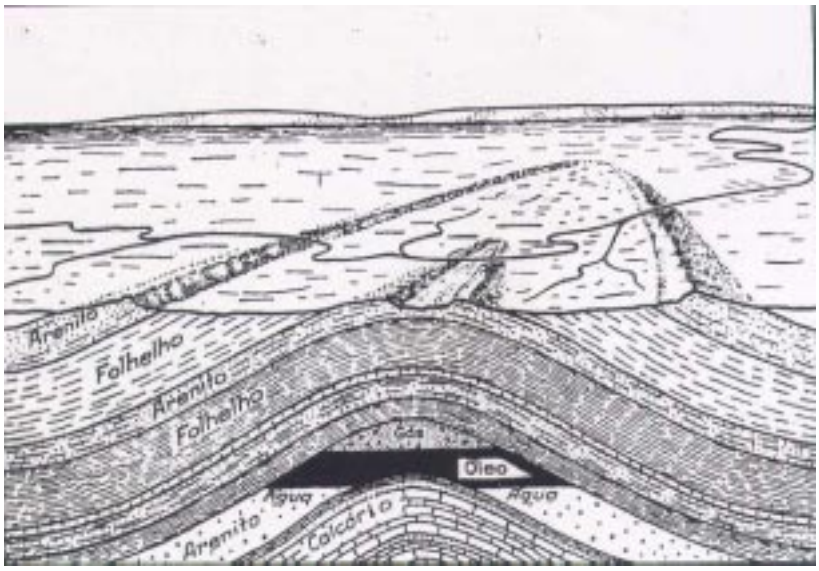

Leinz, V. & Amaral, S.E. *Geologia Geral*. São Paulo, Cia. Ed. Nacional, p. 277 - 78.

A figura acima mostra uma estrutura favorável ao acúmulo de petróleo. Trata-se de uma estrutura

A) plano-paralela.
B) anticlinal.
C) dobrada e falhada.
D) em domo salino.

QUESTÃO 25

Sendo 17 horas no Meridiano de Greenwich, é correto afirmar que nos pontos A, B, C e D são, respectivamente,

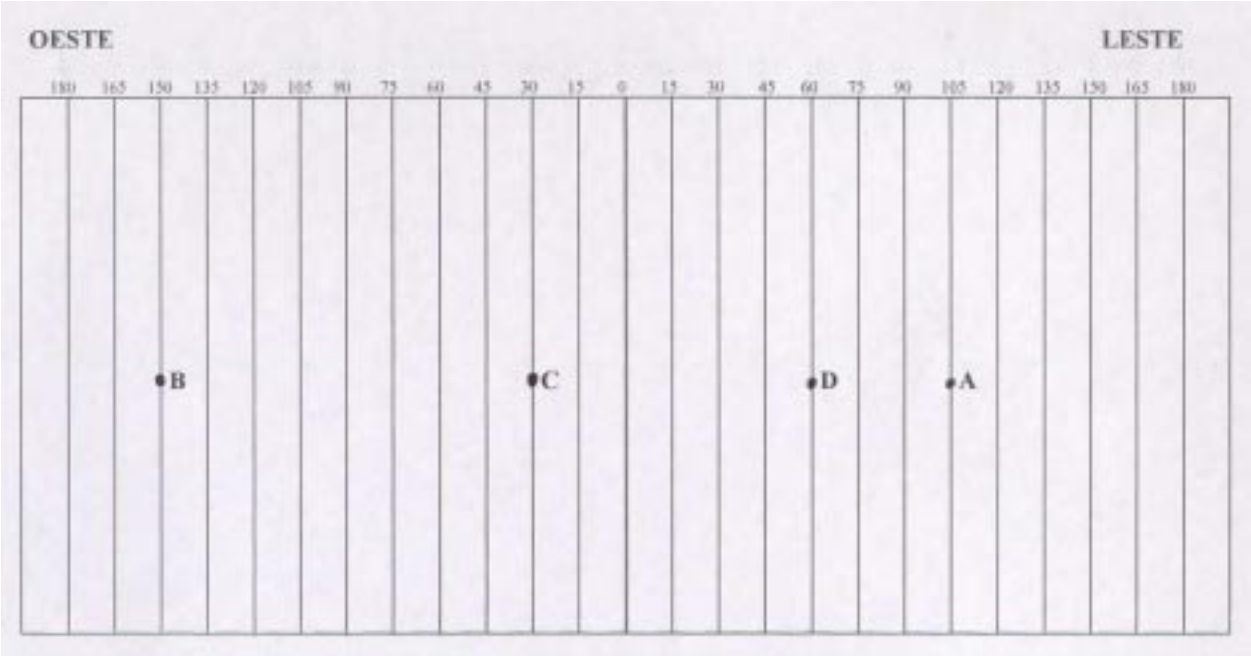

A) 24, 15, 19 e 21 horas.
B) 12, 3, 9 e 20 horas.
C) 21, 16, 8 e 24 horas.
D) 24, 7, 15 e 21 horas.

QUESTÃO 26

Blocos - Diagramas esquemáticos de uma porção do terreno.



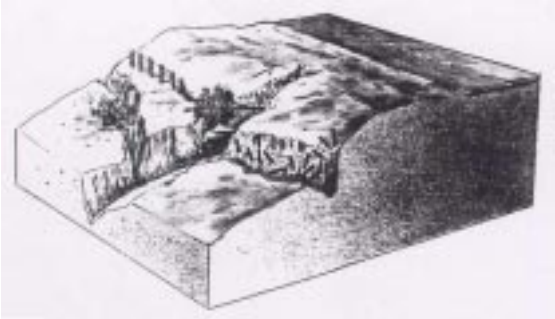

s/ escala

As figuras acima indicam a evolução de um processo natural acelerado pela ação antrópica, provocando

A) erosão laminar.
B) movimento de massa.
C) erosão em sulcos.
D) movimentos tectônicos.

QUESTÃO 27

EVOLUÇÃO DA POPULAÇÃO BRASILEIRA: 1940 – 1999

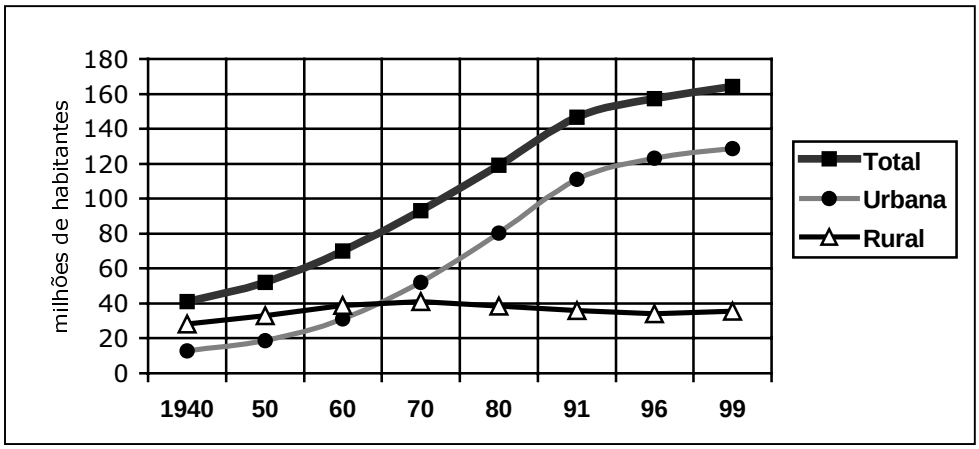

Fonte: IBGE

Com base nos dados apresentados no gráfico e na combinação de diversos fatores do ponto de vista demográfico e econômico, é **INCORRETO** afirmar:

A) o forte processo de modernização do campo entre 1950-60 provocou o grande esvaziamento da população rural.

B) a participação da população rural vem perdendo importância desde os anos 60, devido à migração de agricultores para os centros urbanos, em busca de melhores condições de vida.

C) após 1970, o processo de industrialização da agricultura contribuiu para a inversão da distribuição da população rural e urbana.

D) a população urbana brasileira cresceu quase dez vezes entre 1940-99, configurando-se em uma das maiores nações urbanas do mundo, com cerca de 80% dos habitantes vivendo nas cidades.

QUESTÃO 28

Um novo modelo de desenvolvimento industrial surge em diversas partes do mundo no final do século XX, notadamente na chamada "Terceira Itália". Esta área, junto com algumas outras (Rhone-Alpes na França, Baden-Württenberg e Baviera na Alemanha, Suiça e Áustria), compõe a macrorregião européia denominada *Área de Desenvolvimento do Arco Alpino*, apresentando resultados surpreendentes em termos de geração de emprego e renda.

ITÁLIA

Adaptado de Beccattini, in: *Empresários e Empregos nos Novos Territórios Produtivos*: o caso da Terceira Itália / Giuseppe Cocco e Alexander P. Galvão (org). Rio de Janeiro, DP&A, 1999, p. 52

Sobre a "Terceira Itália", é **INCORRETO** afirmar:

A) localiza-se basicamente nas porções Nordeste e Central da Itália, compreendendo as regiões do Vêneto, Trentino, Friuli-Venezia-Giulia, Emilia-Romagna, Toscana, Marche e parte da Lombardia.

B) configura-se como um novo espaço industrial que se apresenta como desdobramento do tradicional dualismo italiano entre o Norte desenvolvido (Primeira Itália) e o Sul atrasado (Segunda Itália).

C) apresenta-se como o parque industrial mais desenvolvido daquele país, devido à existência de grandes empresas multinacionais dispersas no território italiano.

D) constitui redes industriais organizadas em *distritos industriais*, caracterizadas principalmente pela produção de bens de consumo tradicionais, tais como artigos de vestuário, mobiliário, calçados e produtos têxteis.

QUESTÃO 29

DISTRIBUIÇÃO DE RENDA NA REPÚBLICA POPULAR DA CHINA – 1998

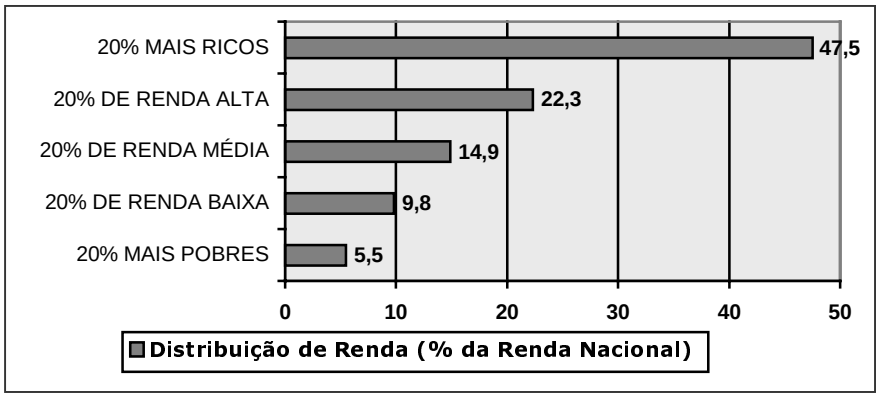

Fonte: Banco Mundial – Relatório 1999.

Sobre a distribuição de renda e o processo de abertura econômica na República Popular da China, assinale a alternativa que melhor explica o gráfico acima.

A) A população rural, estimada em cerca de 70% do total da população do país, representa o segmento da sociedade chinesa de maior renda nos últimos anos.

B) A abertura comercial chinesa iniciada em 1978, por Deng Xiaoping, tem contribuído para a melhoria das condições de distribuição de renda da população.

C) Apesar de os 40% mais ricos se apropriarem de mais de 2/3 da renda nacional, a renda *per capita* chinesa é maior que a dos EUA, e por isso o país é o mais disputado mercado consumidor do mundo.

D) O processo de abertura econômica chinês terá como grande entrave ao desenvolvimento econômico a má distribuição de renda, uma vez que 60% da população representam as parcelas de menor renda no país.

QUESTÃO 30

O Brasil vive atualmente uma crise no campo energético, advinda principalmente de dois fatores: o nível insuficiente dos reservatórios de água que abastecem as hidrelétricas e o aumento do consumo provocado pelo ritmo mais forte da atividade econômica nos diferentes setores produtivos. Em abril deste ano de 2000, o país bateu recorde histórico no consumo de energia elétrica, deixando o sistema energético próximo do limite de segurança e exigindo dos governos soluções para evitar o colapso e o desabastecimento. Dentre as principais medidas e alternativas para reduzir os riscos da escassez de energia, figuram:

I- o estímulo ao uso de fontes primárias de calor para a geração de eletricidade em projetos de termelétricas, a exemplo do gás natural que vem sendo importado da Bolívia.
II- a importação de novas cotas de energia elétrica dos países da América do Sul, como a Argentina, o Paraguai e a Venezuela.
III- a possibilidade de ampliação da capacidade de produção das centrais hidrelétricas brasileiras através de incentivos à entrada de capital privado no setor.
IV- a priorização dos investimentos para a construção de novas usinas hidrelétricas de grande porte, como a de Itaipu, no Rio Paraná.
V- o incentivo ao aproveitamento de resíduos em usinas térmicas que usam bagaço de cana como combustível, tal como as usinas de álcool e açúcar do interior do Estado de São Paulo.

Está correto apenas o que se afirma em:

A) I, II, III e IV
B) I, II, III e V
C) II, III, IV e V
D) I, III, IV e V