GEOGRAFIA

QUESTÃO 21

Observe a tabela.

POPULAÇÃO DE CONSUMIDORES NOS PAÍSES, EM 2002

País	População da Classe de Consumidores (em milhões)	Participação noTotal da População (em %)
Estados Unidos	242,5	84
China	239,8	19
Índia	121,9	12
Japão	120,7	95
Alemanha	76,3	92
Federação Russa	61,3	43
Brasil	57,8	33
França	53,1	89
Itália	52,8	91
Reino Unido	50,4	86

Fonte: Worldwatch Institute. *Estado do Mundo, 2004*: estado do consumo e o consumo. Trad. H. Mallett e C. Mallett. Salvador: Uma Ed., 2004, 326p.

A respeito da temática abordada na tabela, analise as afirmativas.

I - Apesar da diferença entre os níveis de desenvolvimento econômico das nações apresentadas, observa-se uma participação homogênea no acesso ao consumo das populações destes países.

II - A classe conjunta de consumidores da China e Índia é maior que em todos os países europeus citados, embora apresente uma participação percentual menor no total da população.

III - Os países em desenvolvimento, citados na tabela, além de possuírem números absolutos de consumidores muito expressivos, ainda apresentam um grande potencial para expandir e incrementar um novo padrão de consumo.

Quanto às afirmativas acima,

A) estão corretas apenas I e III.

B) estão corretas apenas II e III.

C) estão corretas apenas I e II.

D) apenas II está correta.

QUESTÃO 22

A construção de Brasília faz parte de um projeto de interiorização do desenvolvimento e de integração nacional. Sob o lema desenvolvimentista de que *todos os caminhos levam a Brasília*, a função administrativa desta cidade foi a estratégia para a dinamização da economia na região Centro-Oeste.

O mapa abaixo mostra a área de influência de Brasília.

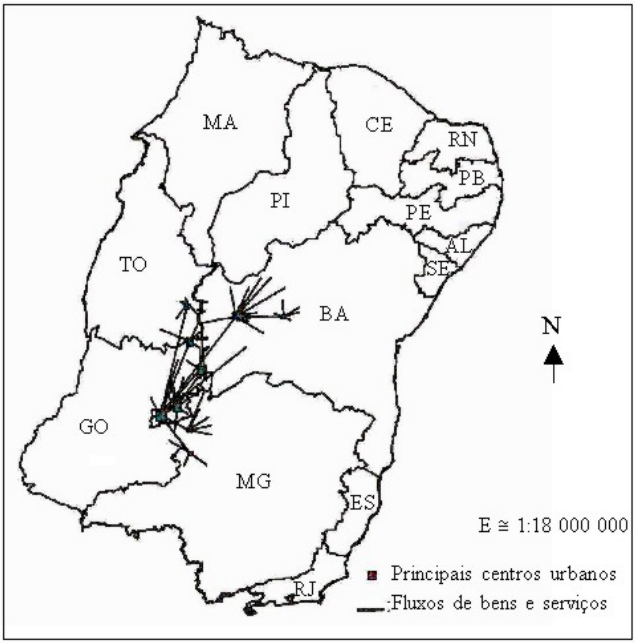

Fonte: HOGAN, D. J. et al. (orgs.). *Migração e Ambiente nas Aglomerações Urbanas*. Campinas: NEPO/UNICAMP, 2001, p. 81.

Sobre a dinâmica recente do Centro-Oeste e a importância de Brasília para o desenvolvimento regional, assinale a afirmativa correta.

A) As cidades satélites têm se constituído em espaços privilegiados das classes mais abastadas que trabalham no Distrito Federal.

B) Apesar do dinamismo econômico observado no Centro-Oeste, a região continua a apresentar a menor taxa de densidade demográfica do país.

C) A condição de cidade administrativa e as atividades terciárias a ela relacionadas, não caracterizaram Brasília como um pólo de desenvolvimento regional.

D) O impacto econômico, causado no Centro-Oeste pela presença de Brasília, alavancou o desenvolvimento dos principais pólos regionais de Goiás: Goiânia e Anápolis.

QUESTÃO 23

MINAS GERAIS: GRAU DE URBANIZAÇÃO, SEGUNDO FAIXAS DE TAMANHO DE POPULAÇÃO – 1970/1980/1991/2000 (em %)

CRITÉRIOS	1970	1980	1991	2000
Urbanização Total do Estado	52,8	67,1	74,9	82,0
Critérios Alternativos				
Cidades com mais de 500 mil habitantes	10,8	13,3	12,8	18,3
Cidades com mais de 100 até 500 mil habitantes	9,8	15,0	21,0	21,0
Cidades com mais de 50 até 100 mil habitantes	8,6	15,2	18,2	14,7
Cidades com mais de 20 até 50 mil habitantes	30,2	22,3	19,3	17,2
Cidades com mais de 10 até 20 mil habitantes	20,9	17,8	15,9	13,6
Cidades com até 10 mil habitantes	19,8	16,4	12,9	15,3

Fonte: Instituto Brasileiro de Geografia e Estatística – IBGE, *Censos Demográficos*, 1970/1980/1991/2000.

Tendo em vista os dados da tabela sobre o grau de urbanização de Minas Gerais, no período de 1970 a 2000, é correto afirmar que

A) o processo de concentração da população urbana mineira é observado, principalmente, nas cidades acima de 100 mil habitantes.

B) as cidades com menos de 50 mil habitantes apresentaram um aumento percentual na sua participação na população de Minas Gerais.

C) a maior porcentagem da população urbana do estado, em 2000, concentrava-se em cidades com mais de 500 mil habitantes.

D) as cidades entre 50 e 100 mil habitantes apresentaram um processo contínuo de aumento na participação percentual da população urbana do estado.

QUESTÃO 24

A discussão de como levar a água para o semi-árido não é recente. O projeto de transposição do Rio São Francisco tem sido considerado como a alternativa à população flagelada pelos efeitos das estiagens prolongadas que ocorrem na Região Nordeste do país. Tal projeto consiste na construção de dois canais artificiais distintos – eixos Norte e Leste – destinados a ligar o rio ao semi-árido dos estados de Pernambuco, Ceará, Paraíba e Rio Grande do Norte. Na base do problema está o impacto do flagelo das secas sobre o semi-árido, onde se localizam 10 milhões de indigentes, dos 17 milhões do Nordeste (54,5% do total nacional).

No entanto, a proposta tem gerado resistência na sociedade, que defende a revitalização do rio. A frase que resume o principal embate político e científico da atualidade é **TRANSPOSIÇÃO, NÃO! REVITALIZAÇÃO, SIM!**

A respeito do assunto tratado, considere as afirmativas.

I - O maior problema não seria a falta de água, mas sim uma estrutura social anacrônica, em que ainda persistem os interesses das oligarquias e do clientelismo que assolam a população regional.

II - Há necessidade de revegetação das margens do rio, recuperação e melhoria de trechos navegáveis, por meio de derrocamento e também de dragagem de alguns pontos de areia existentes.

III - Antes de implementar o programa de irrigação a partir da transposição das águas, é imprescindível um amplo programa de saneamento básico e de abastecimento de água em quase todos os municípios nordestinos afetados.

IV - Os megaprojetos irrigados, destinados à exportação, ao serem implantados contribuiriam para a desconcentração de terras e águas, estruturando a produção voltada para o mercado local e para a diminuição dos bolsões de miséria.

Acerca dos argumentos em defesa da revitalização do Rio São Francisco, estão corretas

A) apenas as afirmativas I, II e III.

B) apenas as afirmativas I, III e IV.

C) apenas as afirmativas II, III e IV.

D) apenas as afirmativas I, II, e IV.

QUESTÃO 25

Leia o fragmento a seguir.

> As RESEX ou Reservas Extrativistas são "espaços territoriais destinados à exploração auto-sustentável e conservação dos recursos naturais renováveis, por populações tradicionais. Em tais áreas é possível materializar o desenvolvimento sustentável, equilibrando interesses ecológicos de conservação ambiental, com interesses sociais de melhoria de vida das populações que ali habitam."
>
> Fonte: http://www.ibama.gov.br/resex/resex.htm
> Acesso em 06/03/2005.

A respeito deste assunto, relacione a reserva citada com os principais produtos explorados.

I - RESEX Alto Juruá (AC)	a - seringueira
	b - babaçu
II - RESEX Mata Grande (MA)	c - crustáceos
	d - cacau
III - RESEX Pirajubaé (SC)	e - pinhão

Assinale a alternativa que contempla a relação correta.

A) Ib, IId e IIIe

B) Ia, IIb e IIIc

C) Ie, IIb e IIIc

D) Ia, IIc e IIIb

QUESTÃO 26

Observe os mapas.

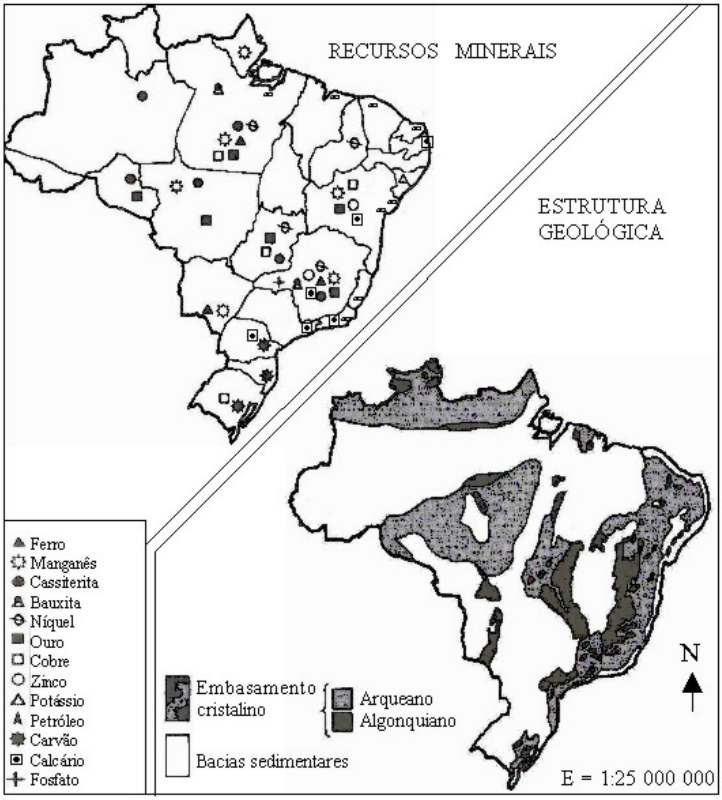

Adaptado de: SIMIELLI, M. H. *Geoatlas*. 31ª ed. São Paulo: Ática, 2003, p. 83-84.

De acordo com as informações apresentadas nos mapas, é correto afirmar que

A) o ferro, o manganês e a bauxita encontram-se em terrenos sedimentares.

B) o calcário e o potássio concentram-se em áreas de terrenos cristalinos.

C) a formação de combustíveis fósseis está associada aos terrenos sedimentares.

D) o ouro e o carvão predominam no Norte do Brasil, onde ocorre intensa sedimentação.

QUESTÃO 27

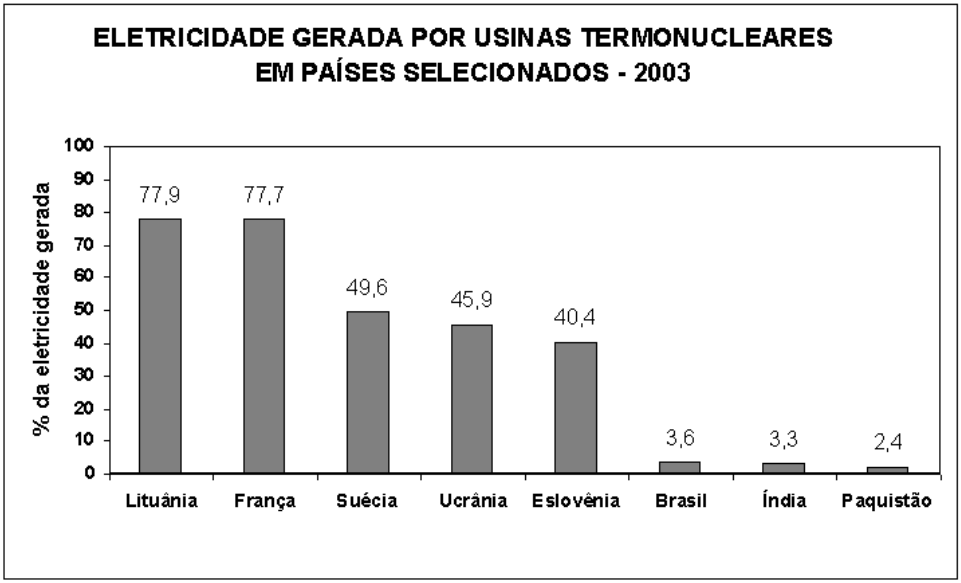

Fonte: SIMANTOB, E. Solução ou ameaça. *Primeira Leitura*, São Paulo, n. 33, nov./2004, p. 74-75.

Observe o gráfico acima e assinale a alternativa correta.

A) A eletricidade gerada em usinas atômicas da Eslovênia e do Brasil representa a base das respectivas matrizes energéticas nacionais.

B) Os programas nucleares da Índia e do Paquistão foram mais importantes para a indústria bélica do que para a matriz energética destes países.

C) O acidente na usina de Chernobyl fez com que a eletricidade gerada por unidades nucleares se tornasse insignificante para a Ucrânia e a Suécia.

D) Lituânia e França utilizam as usinas termonucleares como simples complementação para a produção de eletricidade.

QUESTÃO 28

Em 2004 o Instituto Brasileiro de Geografia e Estatística (IBGE) lançou o primeiro mapa dos biomas continentais brasileiros, conforme apresentado abaixo. Publicou, também, a terceira edição do mapa de vegetação do Brasil, fonte para os estudos e conservação do meio ambiente.

Adaptado: Instituto Brasileiro de Geografia e Estatística - IBGE, 2004.

Considerando as informações do mapa e as principais características dos biomas brasileiros, é correto afirmar que

A) a Amazônia, maior bioma brasileiro, possui solos de grande profundidade, o que permite a sustentação da vegetação nativa, o desenvolvimento de culturas comerciais e da pecuária intensiva.

B) o Pantanal, de formação vegetal complexa, localiza-se numa extensa área de planície inundável onde as atividades predatórias, o contrabando de animais e a poluição dos rios constituem-se como os principais problemas ambientais.

C) os Campos, presentes em todo o território nacional, apresentam solos extremamente argilosos e profundos, o que favorece a prática de uma agricultura de subsistência.

D) a Caatinga, presente em quase toda a região Nordeste, possui solos ácidos e profundos, ocupados por extensos campos, praticamente intactos, devido às práticas agrícolas desenvolvidas no local.

QUESTÃO 29

A África, com aproximadamente 20% das terras emersas do globo, apresenta uma grande diversidade geográfica. Com relação aos principais aspectos econômicos do continente africano, assinale a alternativa correta.

A) Atualmente o continente africano apresenta como principal atividade econômica a produção industrial.

B) A Argélia e a Líbia são dois países da África Setentrional que se destacam pela produção de petróleo.

C) A atual distribuição dos transportes ferroviários tem proporcionado a integração regional do continente.

D) A região do Golfo da Guiné destaca-se entre os maiores produtores mundiais de cereais e de carne bovina.

QUESTÃO 30

Sobre os aspectos geográficos da América do Norte, é correto afirmar que

A) o Oeste caracteriza-se por apresentar uma vegetação rasteira, denominada localmente de estepes, onde se desenvolve o cultivo do algodão.

B) a totalidade de suas terras apresenta-se na zona temperada do norte, onde predominam as altas temperaturas com baixa pluviosidade.

C) a região central caracteriza-se por apresentar um extenso planalto, que se constitui como um importante divisor de águas.

D) os Grandes Lagos, localizados entre o Canadá e os Estados Unidos, deságuam no rio São Lourenço, que se constitui como um importante corredor comercial da região.