GEOGRAFIA

QUESTÃO 21

A Internet é um dos grandes símbolos da globalização. A rede mundial de computadores interliga, atualmente, aproximadamente 700 milhões de usuários dispersos em vários países do globo. No entanto, conforme demonstram as informações abaixo, o seu uso é bastante desigual.

USUÁRIOS DE INTERNET NOS PAÍSES SELECIONADOS - 2001

PAÍS	Total de Usuários (em milhões)	Porcentagem em relação à população mundial de usuários	Porcentagem dos usuários em relação à população do país
Estados Unidos	142,8	28,5	50,0
Japão	55,9	11,1	44,0
China	36,3	7,2	2,8
Alemanha	30,8	6,1	37,4
Coréia do Sul	24,3	4,8	51,4
Reino Unido	24,0	4,8	40,8
Itália	16,4	3,3	28,3
França	15,6	3,1	26,4
Brasil	8,0	1,6	4,6
Países Baixos	7,9	1,6	49,4
Espanha	7,4	1,5	18,0
Austrália	7,2	1,4	37,1
Índia	7,0	1,4	0,7

Fonte: http://www.estudiohosting.com.es/img/pais/, acesso em março de 2006.(Adaptado)

A partir das informações apresentadas na tabela acima, pode-se afirmar que

A) houve a superação das desigualdades históricas entre os diferentes grupos de países, no que se refere ao acesso a bens e serviços avançados.

B) conectar-se à rede mundial é um privilégio de poucos habitantes do globo, principalmente, nos países subdesenvolvidos.

C) o número de usuários da internet tem aumentado, o que evidencia a amplitude e a homogênea difusão espacial das inovações tecnológicas em todo o globo.

D) nos países emergentes, a proporção de usuários da internet, em relação à população do respectivo país, supera a de países europeus.

QUESTÃO 22

O gráfico abaixo apresenta o número de ocupações de terra no Brasil no período 1988-2004.

BRASIL: NÚMERO DE OCUPAÇÕES DE TERRAS, 1988-2004

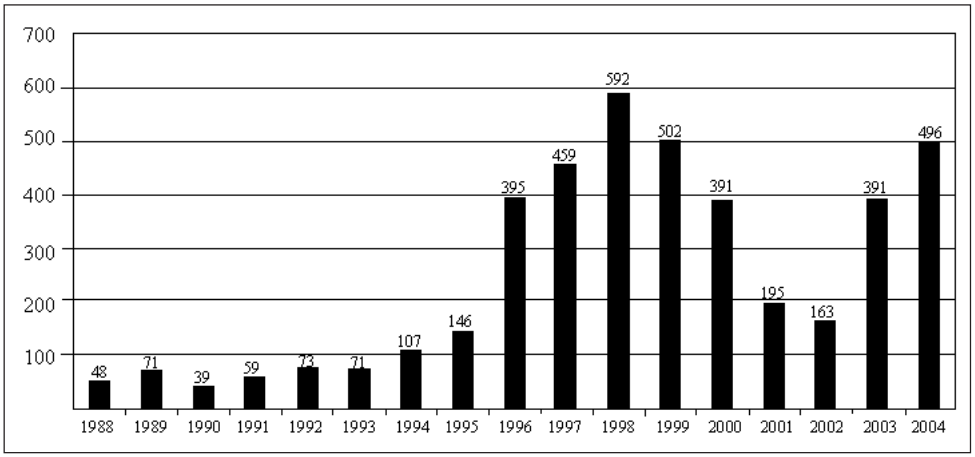

Fonte: Setor *de Documentação da* CPT - *Comissão Pastoral da Terra*, 2004.

Com base nas informações contidas neste gráfico, assinale a alternativa **INCORRETA**.

A) O aumento dos conflitos no campo é decorrente, por um lado, da ação histórica arbitrária e opressiva do Estado e, de outro, da ofensiva dos trabalhadores rurais sem-terra na ocupação dos latifúndios.

B) A aceleração das ocupações de terras ocorreu a partir do Governo FHC, demonstrando que a questão da Reforma Agrária continua sendo um problema para o atual governo Lula, caracterizado pela expansão do agronegócio.

C) Os números refletem um maior nível de mobilização de movimentos de luta pelo acesso à terra que surgiram nas últimas décadas no Brasil, compostos, inclusive, por camponeses, indígenas, afrodescendentes e mulheres.

D) Os números, relativamente baixos, de ocupações de terras até 1995 caracterizam-se pela ausência de pressões sociais pela Reforma Agrária, em razão da baixa concentração privada de terras nas mãos dos latifundiários.

QUESTÃO 23

Os rios são de grande importância para a organização do espaço geográfico, trazendo inúmeros benefícios para a sociedade. Abaixo, apresentam-se alguns dos principais rios do mundo, suas características e importância econômica. A respeito desses rios, numere a **2ª** COLUNA de acordo com a **1ª**.

1) Ganges ( ) É muito poluído por produtos químicos; atravessa a maior região agrícola da China; possui vale de terras férteis, bons pastos e importantes jazidas minerais.

2) Reno ( ) É o mais extenso rio da Europa; nasce no norte da Rússia; consiste numa importante via fluvial de transporte; corre pela planície Russa e deságua no Mar Cáspio.

3) Nilo ( ) É uma importante via comercial; nasce na Floresta Negra; percorre vários países; deságua no Mar Negro, formando um grande delta que chega à fronteira da Ucrânia.

4) Danúbio ( ) Nasce nos Alpes Suíços; atravessa uma das regiões mais densamente povoadas da Europa, historicamente rica em comércio e trocas; deságua no Mar do Norte.

5) Huang-ho ( ) É um dos rios sagrados dos hindus; oferece suprimentos de comida e água para os moradores da região; está se esgotando e pondo em risco os rios e as florestas do país.

6) Volga ( ) Forma-se em suas margens uma rica camada de húmus aproveitável para a agricultura; constitui-se uma grande artéria navegável; deságua no Mar Mediterrâneo, formando um grande delta.

Marque a alternativa que apresenta a seqüência numérica correta da **2ª** COLUNA.

A) 5, 6, 4, 2, 1 e 3.
B) 1, 4, 5, 6, 2 e 3.
C) 1, 3, 5, 2, 6 e 4.
D) 5, 1, 3, 6, 2 e 4.

QUESTÃO 24

Há bilhões de anos, as rochas da crosta terrestre vêm sofrendo um contínuo processo de formação e transformação. Atualmente, é possível identificar grandes conjuntos de estruturas geológicas.

Sobre tais estruturas da Terra, assinale a alternativa correta.

A) As cadeias orogênicas, formadas por rochas magmáticas, metamórficas e sedimentares, são consideradas as mais antigas do planeta.

B) As cadeias orogênicas são constituídas por espessas camadas de rochas formadas, sobretudo, no Paleozóico.

C) Os crátons são compostos por extensos terrenos sedimentares que recobrem a superfície dos continentes.

D) Os crátons são terrenos que comportam formas de relevo intensamente desgastadas por longos períodos de erosão.

QUESTÃO 25

A partir da década de 1970, quatro países asiáticos surpreenderam o mundo com uma expressiva industrialização. Devido às características desse processo e à localização de Cingapura, Hong Kong, Coréia do Sul e Taiwan, estes foram denominados Tigres Asiáticos. Recentemente, esses quatro países expandiram sua economia para países vizinhos do Sudeste Asiático, agora denominados de novos Tigres Asiáticos.

Sobre a economia desses países, analise as afirmativas abaixo.

I – Nos novos Tigres, devido à mão-de-obra extremamente qualificada e barata, foram instaladas indústrias de produtos de informática, microeletrônica, *hardware* e *software*.

II – Além dos investimentos dos quatro Tigres Asiáticos, os novos Tigres passaram a fazer parte das redes de negócios de empresas dos Estados Unidos, Japão e de outros países desenvolvidos.

III – Para produzir mercadorias sob encomenda, criadas e planejadas em outros lugares do mundo, surgiram milhares de pequenas empresas em cada um desses novos países.

IV – As reformas políticas, sociais e econômicas implantadas e o aumento do mercado interno de consumo fortaleceram o desenvolvimento dos novos Tigres.

Marque a alternativa que apresenta somente afirmativas corretas.

A) II e III
B) I e II
C) II e IV
D) I, II e III

QUESTÃO 26

Analise os climogramas a seguir.

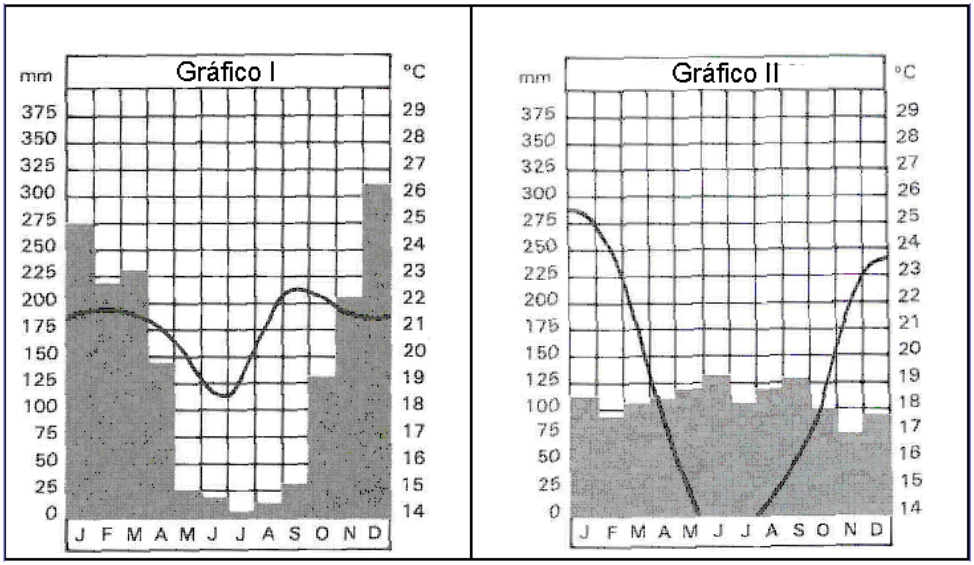

Fonte: FERREIRA, G. M. L. *Atlas Geográfico*. São Paulo:Moderna, 2003, p.13.

A respeito dos climogramas apresentados, suas principais características e áreas de ocorrência no Brasil, assinale a alternativa correta.

A) O gráfico II é a representação do clima equatorial, típico da região Amazônica, com chuvas abundantes o ano todo.

B) O gráfico II representa o clima tropical, típico da região Sul do país, com chuvas o ano todo, devido a intensa atuação da massa equatorial continental.

C) O gráfico I representa o clima tropical continental, típico da região Centro-Oeste, com duas estações bem distintas.

D) O gráfico I representa o clima tropical litorâneo, com temperaturas elevadas durante o ano, principalmente, no outono e no inverno.

QUESTÃO 27

O mapa topográfico contém informações de relevo, codificadas em curvas de nível, dispostas de forma mais ou menos concêntricas, conforme a representação cartográfica abaixo.

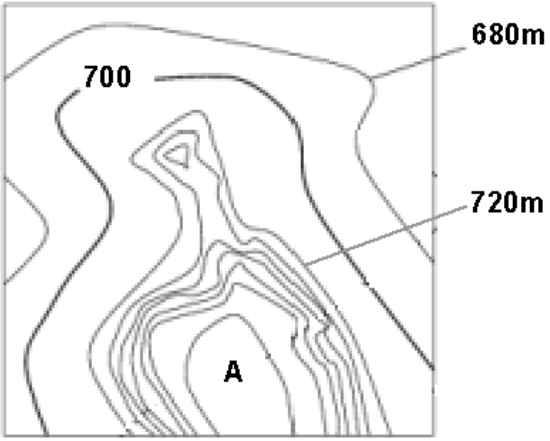

Fonte: http://www.async.com.br/ - acesso em abril de 2006.(Adaptado)

A partir das informações contidas na figura, é possível afirmar que no local assinalado pela letra **A** temos

A) uma depressão.
B) as maiores altitudes.
C) uma depressão e um lago.
D) um rio.

QUESTÃO 28

A Itália é marcada pela disparidade de desenvolvimento econômico e social entre suas porções Norte e Sul. A principal área de concentração industrial italiana, responsável por grande parte da produção industrial do país, é o Vale do Pó, no Norte, uma extensa planície cortada de oeste para leste pelo rio Pó.

Com relação ao processo de industrialização da Itália, assinale a alternativa **INCORRETA**.

A) A rapidez da industrialização italiana deu-se através da participação direta e efetiva do Estado, que facilitou o processo por meio de medidas de estímulo fiscal e da criação de infra-estrutura.

B) Os mais importantes pólos urbano-industriais da Itália, como Milão, Turim e Gênova, destacam-se pela produção diversificada como os setores siderúrgico, químico, petroquímico, automobilístico e outros.

C) No período pós-guerra, o acelerado desenvolvimento industrial italiano ocorreu devido à existência de abundantes recursos naturais presentes em todo seu território.

D) A entrada maciça de capitais estrangeiros, na forma de investimentos diretos e indiretos, e a de divisas, geradas pelo turismo, são fatores que contribuíram para o desenvolvimento industrial italiano.

QUESTÃO 29

A mobilidade da população brasileira sempre esteve ligada ao processo de povoamento do território nacional. A sucessão dos períodos da economia do Brasil favoreceu essa mobilidade que pode ser observada nos mapas abaixo.

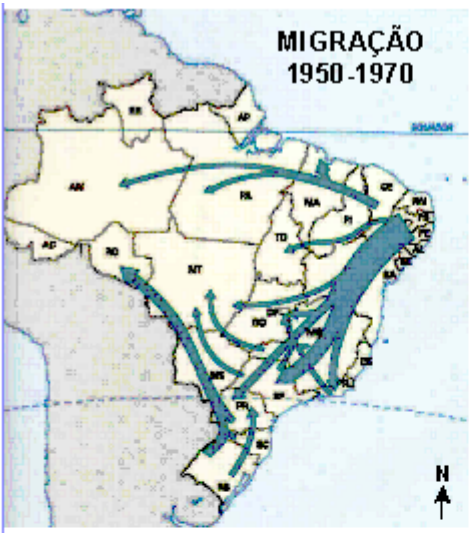

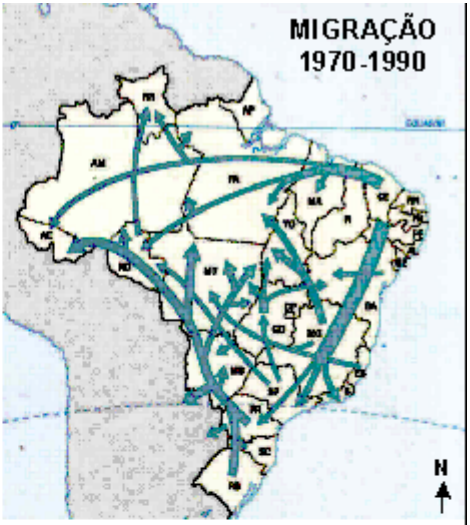

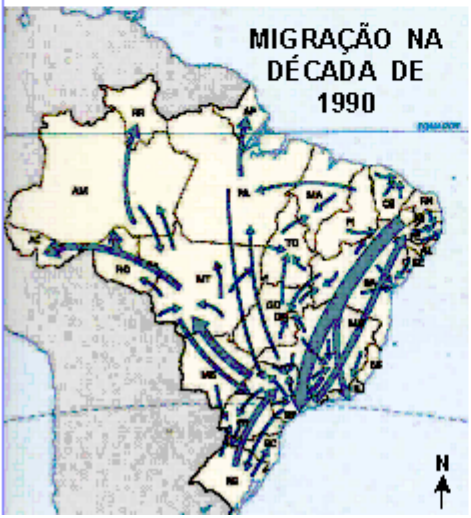

Principais fluxos migratórios

Fonte: SIMIELLI, M. E. *Geoatlas*. São Paulo: Ática, 2000, p. 97.

A análise dos mapas, anteriormente apresentados, permite afirmar que

A) as décadas de 1970-1990 constituem-se como os principais períodos da migração de nordestinos rumo ao Centro-Oeste, fato que contribuiu para que essa região apresente, atualmente, o maior crescimento populacional do país.

B) as décadas de 1950-1970 foram marcadas pela migração de nordestinos para o Sudeste, motivados pela industrialização; para o Mato Grosso e Paraná; e para a Amazônia, devido à criação da Zona Franca de Manaus.

C) a década de 1990 foi marcada pela migração de moradores das periferias das grandes cidades brasileiras, atraídos pelas expectativas de trabalho nas reservas extrativas da região Amazônica.

D) nas décadas de 1970-1990, o maior fluxo de migração interna do Brasil foi o de nordestinos rumo ao Centro-Oeste, onde eles transformaram-se em empresários do extrativismo mineral.

QUESTÃO 30

O mapa abaixo indica duas regiões de Minas Gerais que apresentam grandes desigualdades regionais.

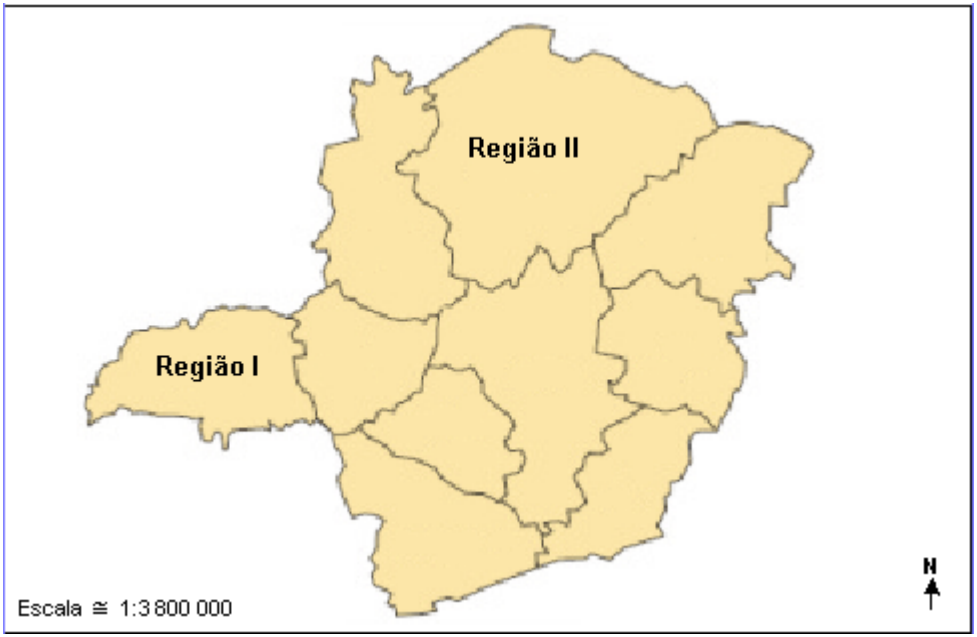

Fonte: Perfil de Minas Gerais, Instituto de Desenvolvimento Industrial de Minas Gerais - INDI, 2006.

A partir da identificação das Regiões I e II, assinale a alternativa que apresenta, respectivamente, as principais características das regiões mencionadas.

Região I	Região II
A) Apresenta grande expansão das atividades agropecuárias modernas; tem atraído investimentos com a instalação de empresas agroindustriais de processamento de alimentos; sua vegetação natural típica é o cerrado.	É considerada uma das regiões mais pobres do estado, sendo polarizada por Montes Claros; pertence ao Polígono das Secas; na atividade agrícola, possui grandes projetos de irrigação, a exemplo do Jaíba.
B) Apresenta grande destaque na pecuária de corte; a atividade industrial nesta região está relacionada, principalmente, aos recursos minerais (calcário, granito e quartzo) e de bens de consumo (calçados, confecções e móveis).	É a região que, sob atuação da SUDENE, apresenta os índices municipais do IDH mais baixos do estado; possui riquezas minerais como diamante, ouro, manganês, mármore e pedras preciosas. Seu clima varia de subúmido a semi-árido.
C) Apresenta a agricultura como atividade mais importante, com destaque para a produção de grãos; é a região mais populosa do estado; apresenta altos níveis de renda e possui, também, a maior rede urbana do estado.	Destaca-se pela sua diversificação nas atividades industriais, tais como nos ramos de siderurgia, metalurgia do zinco e têxtil; mais recentemente, tem o seu desenvolvimento caracterizado pela emergência de um importante pólo automobilístico e de autopeças.
D) Localizada, estrategicamente, entre Belo Horizonte, São Paulo e Distrito Federal; concentra o maior pólo turístico do estado; destaca-se como a região mais industrializada de Minas Gerais.	Compreende a bacia do Vale do Jequitinhonha, que se estende desde as nascentes da Serra da Canastra até a divisa da Bahia, pertencendo à área de atuação da CODEVASF.