GEOGRAFIA

QUESTÃO 21

Observe o mapa abaixo.

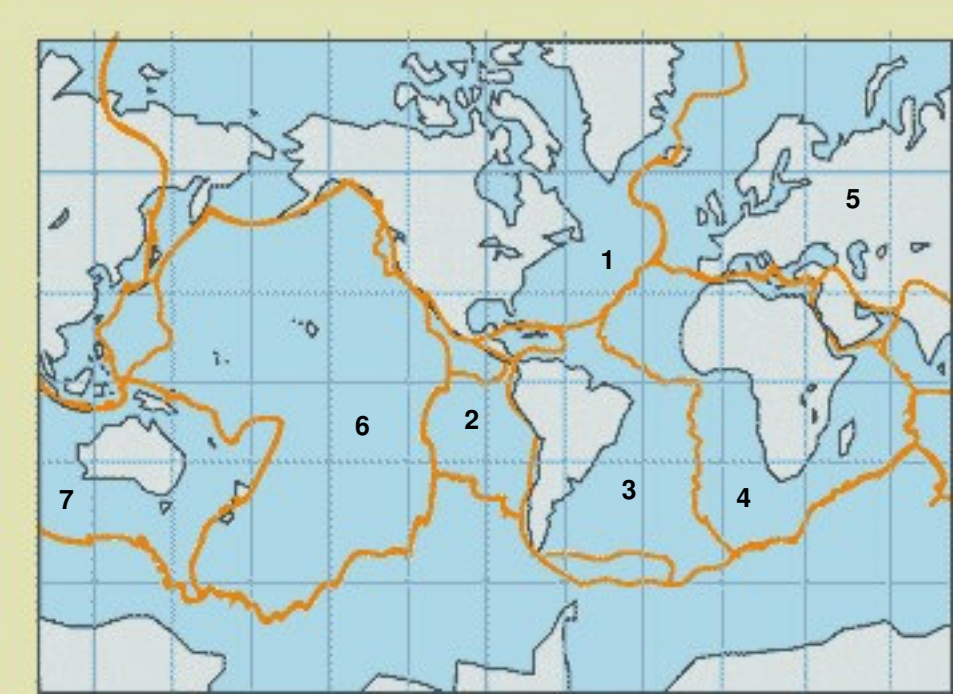

Fonte: *ATLAS Geográfico Escolar. Rio de Janeiro: IBGE, 2002, p.66.*(Adaptado)

Com relação ao movimento das placas tectônicas ilustrado no mapa, marque a alternativa correta.

A) Por subducção, a placa **6** provoca terremotos no Oeste dos Estados Unidos; ao se encontrar com a placa **5,** ocorre translação, como no Japão, provocando tremores e vulcanismo intenso.

B) Entre as placas **3** e **4** há um movimento de dilatação, que provoca vulcanismo de fenda, o qual formou ilhas que representam o topo da cadeia montanhosa submersa, a Dorsal Atlântica.

C) O choque entre as placas **2** e **6**, pelo processo de subducção, formou a Cordilheira dos Andes; enquanto que o choque entre as placas **5** e **4** formou a Cordilheira do Himalaia, área de grande instabilidade tectônica.

D) A placa **4** distancia-se da **5** chocando-se com a placa **3,** o que tem provocado, por subducção, intensos terremotos na Europa e aumentado significativamente o fundo do Oceano Atlântico.

QUESTÃO 22

Ao longo da história, a produção capitalista produziu grandes desigualdades socioeconômicas em várias partes do mundo.

Sobre os principais problemas que afetam as economias subdesenvolvidas, analise as afirmativas abaixo e, a seguir, marque a alternativa correta.

I - Pobreza, guerras civis, Aids, exclusão social, tecnológica e econômica no mundo globalizado marcam a atual situação do continente africano.

II - Concentração de renda, aumento do emprego informal, crises econômicas, recessão e o aumento da pobreza constituem-se os principais problemas da América Latina.

III - No Leste Europeu, após a introdução de mecanismos capitalistas em suas economias, o desemprego, a inflação alta, o custo de vida elevado e as privatizações deixaram de existir.

IV - Direitos humanos não respeitados, desigualdades regionais, perseguições religiosas, movimentos separatistas da Província de Sin-Kiang constituem alguns problemas da China.

Marque a alternativa que apresenta somente afirmativas corretas.

A) II e III

B) I, III e IV

C) I, II e IV

D) II, III e IV

QUESTÃO 23

Observe o gráfico a seguir.

DISTRIBUIÇÃO DA POPULAÇÃO BRASILEIRA, 1950-2000

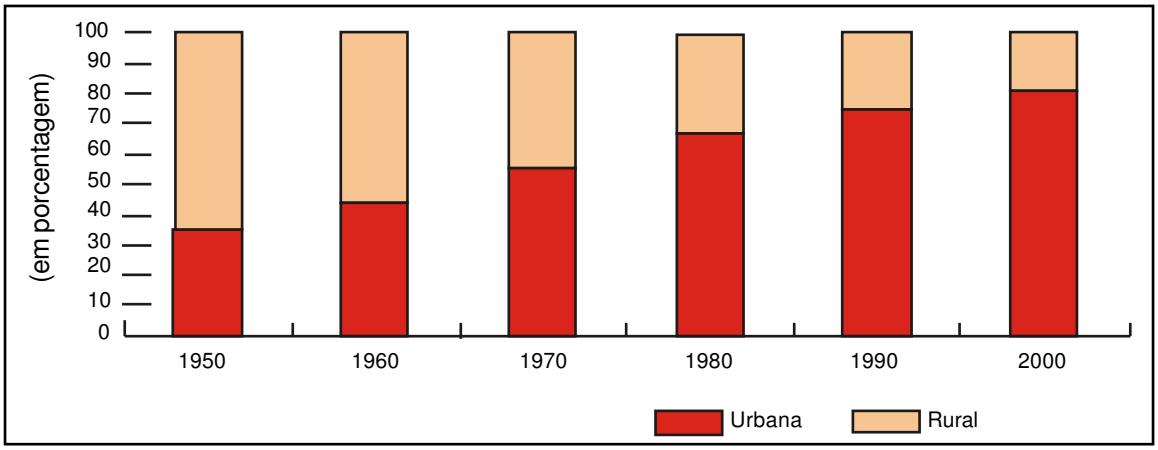

Fonte: IBGE – Censos Demográficos de 1950 a 2000.

A respeito da população brasileira e sua distribuição espacial nos últimos 50 anos, conforme gráfico acima, analise as afirmativas a seguir e marque a alternativa **INCORRETA**.

A) Os dados de distribuição espacial da população brasileira revelaram o aumento da concentração populacional nas áreas urbanas e nas grandes cidades, ao longo das décadas de 1950-1990.

B) O fenômeno do êxodo rural no Brasil intensifica-se principalmente após 1990, em função da abertura de novas fronteiras agrícolas e atração dos grandes centros metropolitanos.

C) O Brasil passou por uma verdadeira transição demográfica. No ano de 1950, cerca de 36% da população brasileira residia na zona urbana, enquanto que em 2000 este percentual passou para pouco mais de 80%.

D) A partir da década de 1970, principalmente por conseqüência da modernização agrícola, houve uma migração maciça do campo para a cidade.

QUESTÃO 24

A idéia de país independente surgiu ainda no século XIX, com a fundação do Partido Nacionalista. Com língua de origem desconhecida e cultura tradicional, durante a ditadura de Francisco Franco, os habitantes desta região foram proibidos de ensinar sua língua (*euskara*) nas escolas e de usar a bandeira com as cores do país.

Esta afirmativa refere-se

A) à questão basca.

B) à questão irlandesa.

C) aos conflitos da caxemira.

D) aos conflitos dos curdistãos.

QUESTÃO 25

Um dos novos fatos que podem ser observados no mercado de trabalho nacional é o aumento da qualificação entre os trabalhadores empregados no setor produtivo. O gráfico comparativo abaixo mostra a evolução da escolaridade da população residente no meio rural empregada em atividades agrícolas e não-agrícolas entre 1993-2004.

ESCOLARIDADE DA POPULAÇÃO RURAL OCUPADA

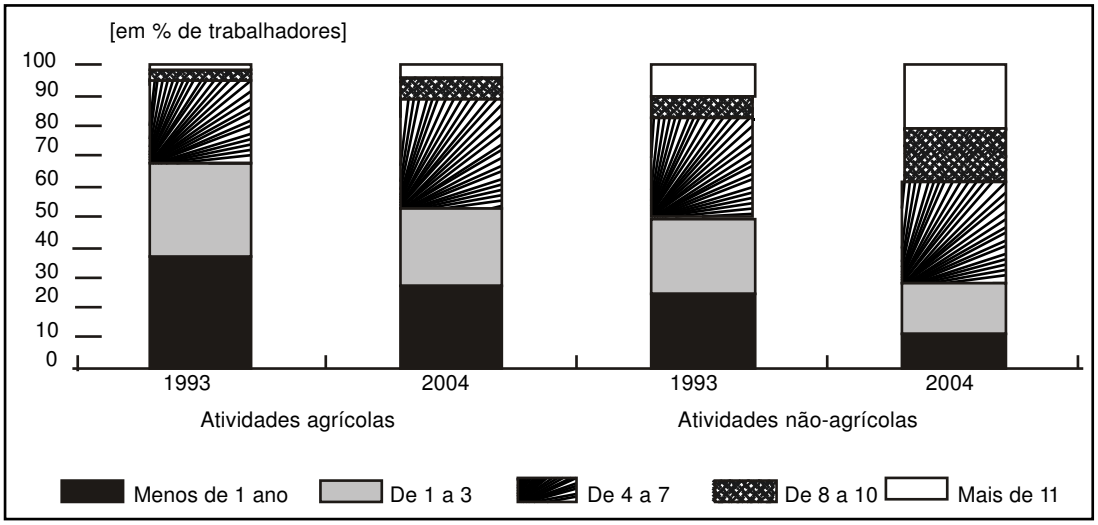

Fontes: IBGE – PNADS; IPEA. Estado de uma Nação, 2006.

Sobre o grau de escolaridade e a qualificação dos trabalhadores no setor produtivo brasileiro, marque a alternativa **INCORRETA.**

A) Entre os trabalhadores de atividades agrícolas e não-agrícolas, diminuiu a proporção daqueles com menos de três anos de estudo, o que indica um maior nível de escolaridade.

B) Entre os trabalhadores de atividades não-agrícolas residentes no meio rural, diminuiu a participação de pessoas que possuem mais de dez anos de estudo.

C) Entre os trabalhadores de atividades agrícolas, a participação de pessoas que têm entre quatro e sete anos de estudo aumentou significativamente.

D) Em 2004, a proporção dos trabalhadores de atividades agrícolas e não-agrícolas que possuíam de 4 a 7 anos de escolaridade, era praticamente semelhante, atingindo em torno de 1/3.

QUESTÃO 26

Observe o gráfico abaixo.

SUBSÍDIOS AGRÍCOLAS EM PAÍSES SELECIONADOS: 1986-88 e 2004

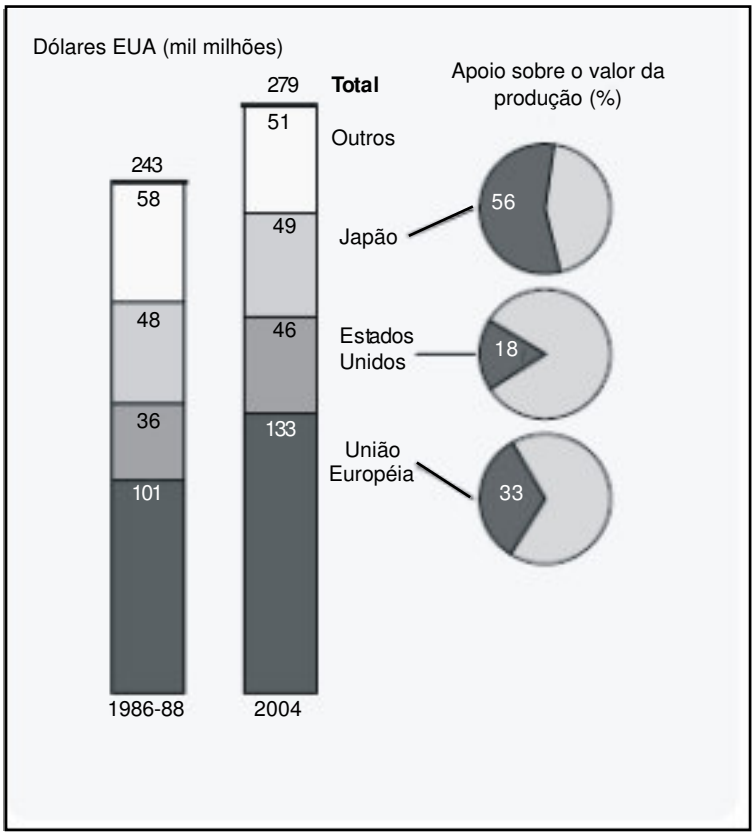

Fonte: PNUD - Relatório do Desenvolvimento Humano, 2005.

No que tange aos subsídios e às políticas agrícolas mundiais, marque a alternativa **INCORRETA**.

A) A Política Agrícola Comum (PAC) da União Européia causa impactos nos mercados mundiais de alguns produtos agrícolas, como o algodão e o açúcar, ao mesmo tempo que dificulta o acesso dos países em desenvolvimento aos mercados europeus.

B) De acordo com os dados do gráfico, os subsídios dos países ricos à agricultura são cada vez maiores, permitindo que a Europa exporte cereais e os Estados Unidos vendam arroz, algodão, milho e outros produtos nos mercados mundiais, abaixo do custo de produção.

C) Os subsídios dos países ricos provocam a destruição do mercado de que dependem os pequenos proprietários dos países pobres, puxando para baixo os preços que recebem pelos seus produtos no comércio mundial.

D) Ao contrário do Japão e da União Européia, a partir de 2004 os Estados Unidos vêm apresentando diminuição dos subsídios agrícolas em relação à década de 1980, em conseqüência do cumprimento dos acordos firmados no âmbito da OMC.

QUESTÃO 27

Na década de 1960, o geógrafo Aziz Nacib Ab'Saber reuniu as principais características do relevo e do clima das regiões brasileiras para formar, com os demais elementos naturais da paisagem, o que denominou de *domínios morfoclimáticos.*

Sobre esse assunto considere o mapa a seguir.

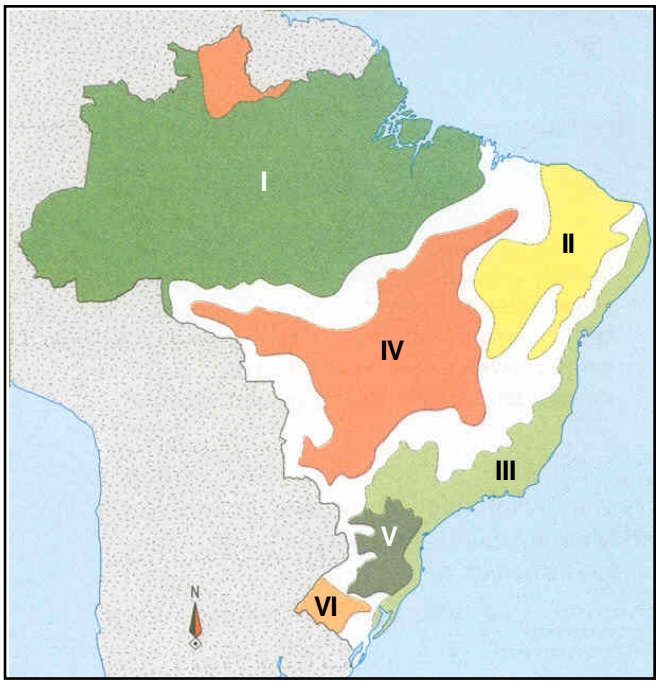

Fonte: AB´SABER, A. N. *Os domínios de natureza no Brasil*: potencialidades paisagísticas. São Paulo: Ateliê Editorial, 2003, s/n. (Adaptado)

De acordo com as informações do mapa, marque a alternativa correta.

A) Em **III**, a ação dos agentes modeladores sobre o substrato geológico cristalino produziu um relevo típico de morros arredondados que constituem o domínio dos "mares de morros florestados".

B) Em **II**, nos planaltos tabulares basálticos, do Pré-Cambriano, recobertos por florestas tropicais úmidas, encontram-se as principais reservas minerais fósseis do território brasileiro.

C) Em **VI**, as planícies, coxilas e chapadas sedimentares constituem o domínio das florestas subtropicais aciculifoliadas.

D) Em **V**, encontra-se o domínio dos planaltos e da bacia sedimentar do Paraná, de clima temperado, com baixas amplitudes térmicas e recoberto por matas tropicais.

QUESTÃO 28

Alguns fenômenos provocam alterações no comportamento das chuvas, dos ventos e das temperaturas em várias regiões. Dentre tais fenômenos destacam-se o "El Niño" e a "La Niña".

Sobre tais anomalias climáticas, marque a alternativa correta.

A) Sob a influência do "El Niño" tem ocorrido mais chuvas, tempestades, furacões e invernos muito brandos na América do Norte; chuvas intensas na Indonésia e na Índia; frio e inundações na Austrália e nas Filipinas.

B) O fenômeno "La Niña" é o resfriamento anômalo das águas superficiais do Oceano Pacífico. Provoca grandes alterações no clima, como secas intensas no Oeste Americano; chuvas e inundações na Austrália e nas Filipinas.

C) No Brasil, no ano de ocorrência da "La Niña", faz muito frio no Sul do país, com chuvas intensas, seca e muito calor nos estados do Acre e Rondônia e em todo o Centro-Oeste e Sudeste.

D) O "El Niño" é um fenômeno atmosférico-oceânico, resultante do aquecimento das águas do Pacífico. No Brasil, provoca secas no Nordeste e no extremo Norte; aumento das temperaturas médias no Sul e Sudeste e ainda enchentes no Brasil Meridional.

QUESTÃO 29

O desenvolvimento socioeconômico está intimamente relacionado ao desenvolvimento das fontes de energia. O dinamismo econômico e a urbanização crescente aumentaram a necessidade de fontes energéticas. Assim, a ampliação dos recursos energéticos é um dos principais problemas das sociedades contemporâneas.

Com relação à produção e reserva mundial de petróleo, observe os gráficos a seguir.

PRODUÇÃO E RESERVA MUNDIAL DE PETRÓLEO – 2002 (em milhões de barris/dia)

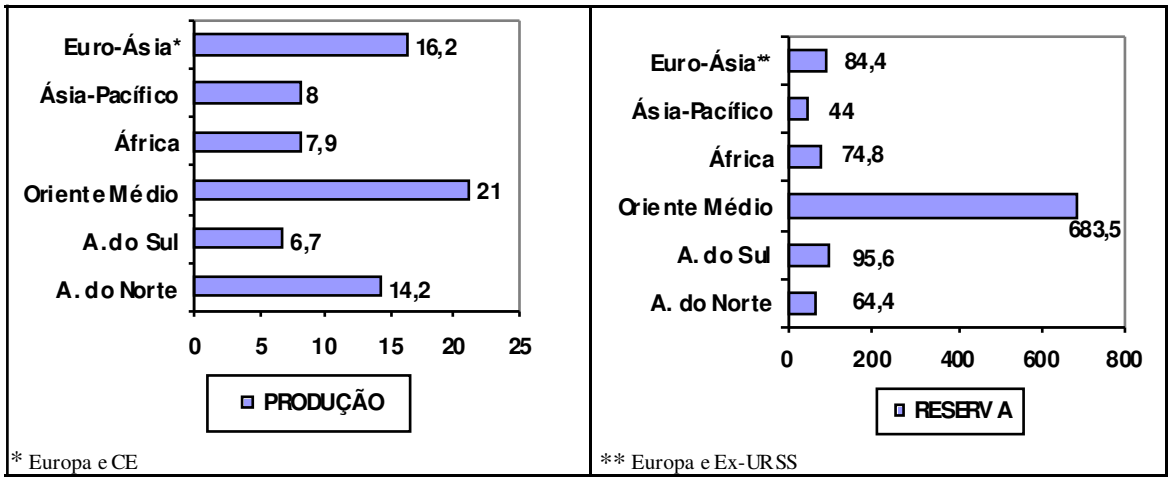

Fontes: Agência Nacional do Petróleo.<www. anp.gov> - Acesso em set./2000.
Gazeta Mercantil, Balanço Setorial, jun./2002. (Adaptado)

Considerando as informações acima e o consumo mundial de petróleo, marque a alternativa correta.

A) Os países mais desenvolvidos são grandes consumidores de energia e importam recursos energéticos para suprir suas necessidades.

B) As maiores reservas de petróleo do mundo estão concentradas em regiões que são, ao mesmo tempo, grandes produtoras e consumidoras de petróleo.

C) O aumento dos gastos com a importação de petróleo tem agravado o desequilíbrio da balança comercial dos países desenvolvidos, que são os maiores consumidores de petróleo do mundo.

D) Os países produtores e exportadores de petróleo apresentam uma produção inferior ao seu consumo.

QUESTÃO 30

O mapa não é uma simples ilustração. É um meio de comunicação, um instrumento de localização, uma fonte de conhecimento sobre uma determinada realidade. Para o geógrafo francês Yves Lacoste, ler um mapa ou uma carta geográfica significa “saber agir sobre o terreno”.

Quanto à representação cartográfica, marque a alternativa correta.

A) Em um mapa de escala de 1: 200 000, a distância em linha reta entre duas cidades é de 20 cm, o afastamento real entre elas é de 400 Km.

B) Quanto maior a escala de um mapa, maior a área representada, o que permite a visualização de maior quantidade de detalhes. Os mapas-múndi são elaborados com escalas grandes como, por exemplo, a escala de 1: 5 000 000.

C) Nas projeções cilíndricas, os paralelos, retos e horizontais, e os meridianos, retos e verticais, formam ângulos retos. Essas apresentam deformações nas áreas de altas latitudes e conservam as proporções das superfícies próximas ao Equador.

D) Na representação do relevo, as cores convencionadas pela Carta Internacional do Mundo (CIM), para mostrar as altitudes, são as batimétricas, que indicam as cotas acima do nível do mar, e as hipsométricas, que indicam as cotas abaixo do nível do mar.