# GEOGRAFIA

## QUESTÃO 01

Considere o **Planisfério** abaixo para responder as **duas questões** a seguir.

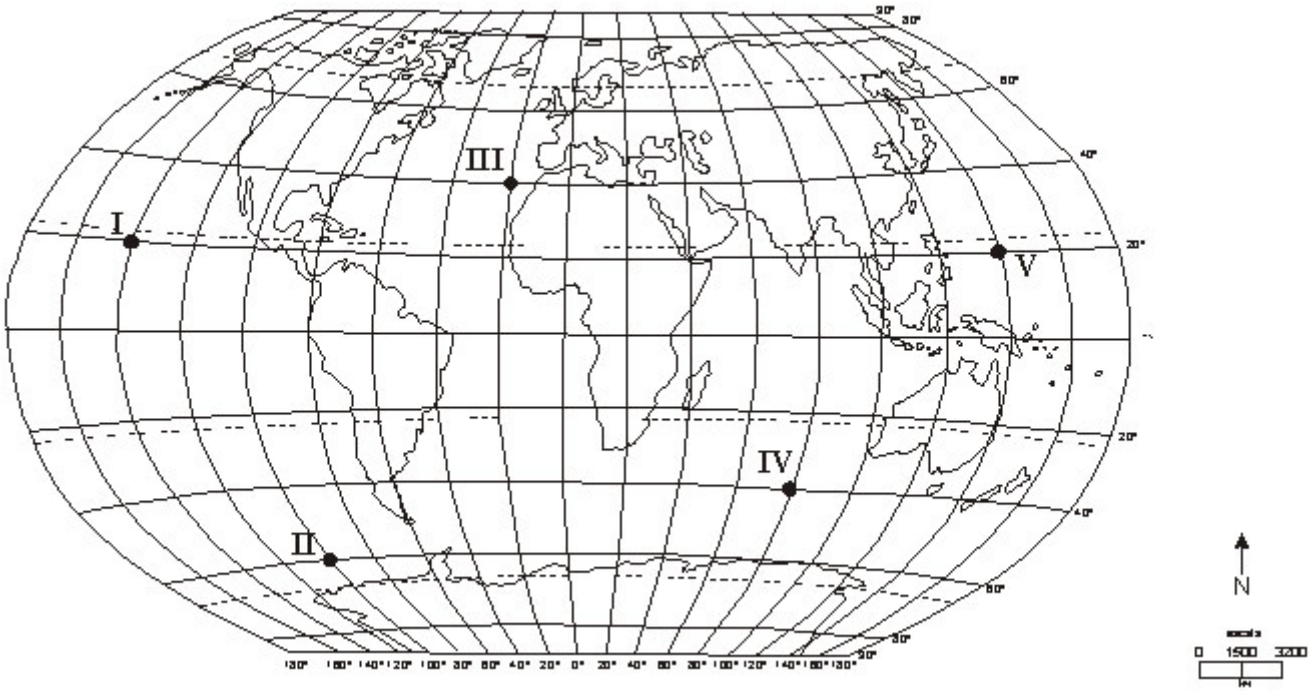


No ponto **I**, indicado no planisfério, há um navio carregado com lixo tóxico que será lançado no oceano. Os demais pontos **II**, **III**, **IV** e **V**, indicam, no planisfério, o local onde se encontram barcos de organizações não governamentais com grupos de ecologistas que pretendem interceptar o navio e impedir o lançamento do lixo tóxico no oceano. De um avião de uma das ONGs avista-se o referido navio e, desse avião, uma mensagem de rádio é enviada para os barcos.

A informação sobre o oceano e sobre as coordenadas geográficas de onde está o navio (ponto **I**) que precisa ser transmitida aos barcos é

A) Oceano Pacífico, $20^0$ de longitude norte e $140^0$ de latitude oeste.

B) Oceano Atlântico, $20^0$ de latitude norte e $140^0$ de longitude oeste.

C) Oceano Pacífico, $20^0$ de latitude norte e $140^0$ de longitude oeste.

D) Oceano Índico, $20^0$ de latitude sul e $140^0$ de longitude leste.

## QUESTÃO 02

Os ecologistas pretendem que o barco mais perto do navio siga na direção desse navio para interceptá-lo. Considerando a posição do navio (ponto **I**) e as posições dos barcos (pontos **II**, **III**, **IV** e **V**), indicadas no planisfério, pode-se afirmar que o ponto e o oceano onde esse barco se encontrava e a direção que esse barco seguiu foram:

A) o ponto **IV**, no oceano Índico, direção nordeste.

B) o ponto **II**, no oceano Pacífico, direção noroeste.

C) o ponto **V**, no oceano Pacífico, direção leste.

D) o ponto **III**, no oceano Atlântico, direção sudoeste, passando pelo canal do Panamá.

## QUESTÃO 03

O fragmento abaixo mostra uma realidade que não se limita mais apenas aos grandes centros urbanos do Brasil, uma vez que, atualmente, já afeta também a vida dos habitantes de muitas cidades médias do país.

> São Paulo é hoje uma cidade de muros. Amedrontados pelo aumento do crime violento e descrentes da eficácia da polícia ou da Justiça, os moradores procuram se proteger o mais que podem. [...] os resultados desses esforços de proteção podem ser resumidos da seguinte maneira: para fazer face à violência, os moradores de São Paulo se aprisionam, adotam soluções privadas de proteção e progressivamente abandonam a esfera pública. No entanto, tudo indica que esse tipo de reação alimenta o ciclo da violência, em vez de contrapor-se a ele. O que poderia ser efetivo para interromper esse ciclo é a retomada e o fortalecimento da esfera pública, algo que os cidadãos de São Paulo parecem resistir a entender.
>
> Teresa Caldeira. A cidade fortificada.
> *Folha de São Paulo*, 22/09/96.

Marque a alternativa que corresponde ao que se pode constatar dessa realidade de que trata esse fragmento, quando se observam certos aspectos e elementos da paisagem urbana.

A) A paisagem da cidade não revela nada da realidade, pois a violência urbana só pode ser observada nas ações e comportamentos de pessoas violentas que vivem na cidade.

B) Presença permanente de policiais nas ruas em todas as áreas da cidade, garantindo segurança pública eficiente a todos os seus habitantes.

C) Muralhas cercando a área urbana, tornando a “cidade fortificada” e seus cidadãos protegidos das ameaças que vêm “de fora”.

D) Existência de condomínios fechados; vigilância particular; residências com grades e muros altos; câmeras de vídeo; praças e outros locais públicos pouco freqüentados à noite.

## QUESTÃO 04

O mapa abaixo apresenta uma divisão do Brasil em apenas três grandes regiões. Essa divisão é diferente daquela mais utilizada pelo IBGE com cinco macrorregiões.

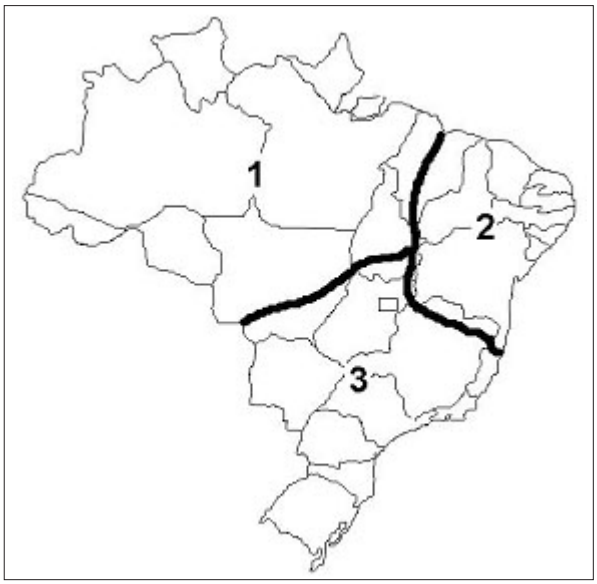


Marque a alternativa que apresenta tanto o título mais adequado para esse mapa como os nomes das três regiões indicadas no mapa pelos respectivos números:

A) Brasil: macrorregiões geoeconômicas. **1**. Amazônia; **2**. Nordeste; **3**. Centro-Sul.

B) Brasil: regiões político-administrativas. **1**. Amazônia; **2**. Nordeste; **3**. Centro-Sul.

C) Brasil: macrorregiões político-administrativas. **1**. Norte; **2**. Nordeste; **3**. Sul.

D) Brasil: regiões naturais. **1**. Floresta Amazônica; **2**. Semi-árido; **3**. Florestas tropicais.

## QUESTÃO 05

Atualmente têm se tornado cada vez mais freqüentes as notícias sobre os congestionamentos no trânsito em São Paulo. Esses congestionamentos aumentam em quilômetros de trânsito lento e engarrafamentos.

Sobre esse problema urbano de muitas cidades brasileiras, é **INCORRETO** afirmar que

A) o crescimento urbano horizontal, com incorporação de novas áreas nas periferias da cidade, aumenta as distâncias nos deslocamentos intra-urbanos, o que contribui para que a população se torne mais dependente dos transportes.

B) as políticas públicas para os transportes urbanos devem sempre priorizar as obras de engenharia, como: a construção de viadutos, túneis, novas avenidas e, ainda, o alargamento de outras avenidas existentes. Desse modo, haverá a garantia de uma circulação rápida da frota crescente de veículos particulares nas cidades.

C) a má qualidade e a baixa eficiência dos transportes coletivos contribuem para o aumento da circulação de carros particulares e o agravamento do problema do trânsito nas cidades.

D) os investimentos para o aumento da quantidade e da qualidade dos transportes coletivos, como ônibus e metrô, por exemplo, contribuem para melhorar o trânsito e diminuir a poluição do ar nas grandes cidades.

## QUESTÃO 06

Na Europa, no século XVIII, iniciou-se uma série de inovações técnicas na produção de mercadorias que provocaram grandes transformações no espaço geográfico mundial nos séculos seguintes. Dentre essas transformações destacam-se: a redução e a modificação das paisagens naturais com o aumento crescente da exploração de recursos naturais; o crescimento das cidades; o desenvolvimento dos meios de transporte e das redes de comunicação.

Essas inovações técnicas e as conseqüentes transformações no espaço geográfico tiveram início com a

A) informática.

B) globalização.

C) atividade industrial.

D) atividade comercial.

## QUESTÃO 07

Leia o texto abaixo.

> Existem actualmente 37 milhões de pessoas abaixo do limiar da pobreza [...], e 50 milhões que embora estejam acima deste limiar estão economicamente muito aquém da classe média. [...] Os níveis de pobreza vêm aumentando desde 2000, [...]. Em 2004, o percentil [...] mais rico detinha 34,3% da riqueza nacional, mais que a riqueza dos 90% mais baixos (apenas 28,7%). A desigualdade econômica vem-se agravando desde 1973, [...] através de uma política financeira de altas taxas de juro; uma política laboral de flexibilização, baixos salários e redução ou eliminação de benefícios sociais; uma política econômica de desregulação dos mercados; e uma política fiscal de cortes dos impostos sobre o rendimento de capital e de propriedade. [...] a perda de poder de compra e assistência social dos trabalhadores, aliada a um sistema de crédito predador, aplicando taxas de juro anuais de 25% ou mais a pessoas de baixo rendimento, tem resultado num crescente endividamento. [...] A recente crise do mercado imobiliário é apenas a face mais visível do fracasso de um sistema financeiro desregulado, sustentado pelo progressivo aprisionamento de mais devedores ...
>
> ... o decréscimo da receita fiscal, em grande parte em benefício das corporações e camadas mais ricas da população, e um orçamento militar que não pára de crescer, originou um défice orçamental que todos os anos tem atingido novos máximos.

http://omilitante.pcp.pt/ André Levy 01-mar-2008.

A partir das informações contidas no texto, marque a alternativa que completa corretamente o enunciado a seguir.

As informações do texto referem-se

A) à atual crise econômica, financeira e social enfrentada pela sociedade brasileira.

B) à China, que apesar de um aparente desenvolvimento econômico enfrenta internamente uma de suas piores crises.

C) aos EUA que estão sendo conduzidos a uma das mais profundas crises econômica, financeira e social desde a Grande Depressão.

D) à Rússia, que desde o final da Guerra Fria, “aprofunda-se” em uma grande crise econômica, financeira e social, apesar de se manter entre os países pertencentes ao G8.

## QUESTÃO 08

A respeito do processo de industrialização dos países subdesenvolvidos, pode-se afirmar que

A) a Coréia do Sul é um exemplo de país que teve, entre os fatores responsáveis pelo seu desenvolvimento industrial, uma considerável melhoria no sistema escolar, e, conseqüentemente, na qualificação da mão-de-obra.

B) todos os países subdesenvolvidos industrializaram-se nas décadas seguintes à Segunda Guerra Mundial.

C) os países do antigo Terceiro Mundo desenvolveram, primeiramente, as indústrias pesadas ou de bens de produção.

D) atualmente, os únicos países pertencentes ao chamado mundo subdesenvolvido que podem ser considerados industrializados são Argentina, México e Brasil.

## QUESTÃO 09

Vi ontem um bicho, na imundície do pátio, catando comida entre os detritos (...) O bicho não era um cão, não era um gato, não era um rato. O bicho, meu Deus, era um homem.

Do poema ''O bicho'', que Manuel Bandeira escreveu em 1956 - *Obras Poéticas*. In MENDES, Juscelino V. *A Fome*. Página de Juscelino Vieira Mendes, seção "Poesia & Teatro". Sítio http://planeta.terra.com.br/arte/juscelinomendes/, Internet, Campinas, 2003.

O fragmento acima retirado do poema "O bicho", apesar de escrito em 1956, mostra-se atual, pois está diretamente relacionado ao problema da fome.

Sobre esse problema, pode-se afirmar que

I - a fome é causada, dentre outros motivos: pela deficiente planificação agrícola; pela injusta e antidemocrática estrutura fundiária; pela influência das transnacionais de alimentos na produção agropecuária; pelo contraste na concentração da renda e pelos hábitos alimentares das populações dos países subdesenvolvidos.

II - sendo a fome no Brasil um problema epidêmico, sua natureza é política e econômica, ou seja, não provém de calamidades ou de um regime de escassez, mas da falta de recursos da população mais pobre para comprar alimentos.

III - a modernização agrícola aumenta a cada dia a demanda de alimentos do planeta, sendo essa demanda, portanto, a solução para as regiões brasileiras que sofrem com o problema da fome.

Marque a alternativa que apresenta **apenas** informações corretas.

A) I e II

B) I e III

C) I, II e III

D) II e III

## QUESTÃO 10

Considere o mapa abaixo.

**DROGAS E PIRATARIA: O PODER DOS TERRITÓRIOS FORA-DA-LEI**

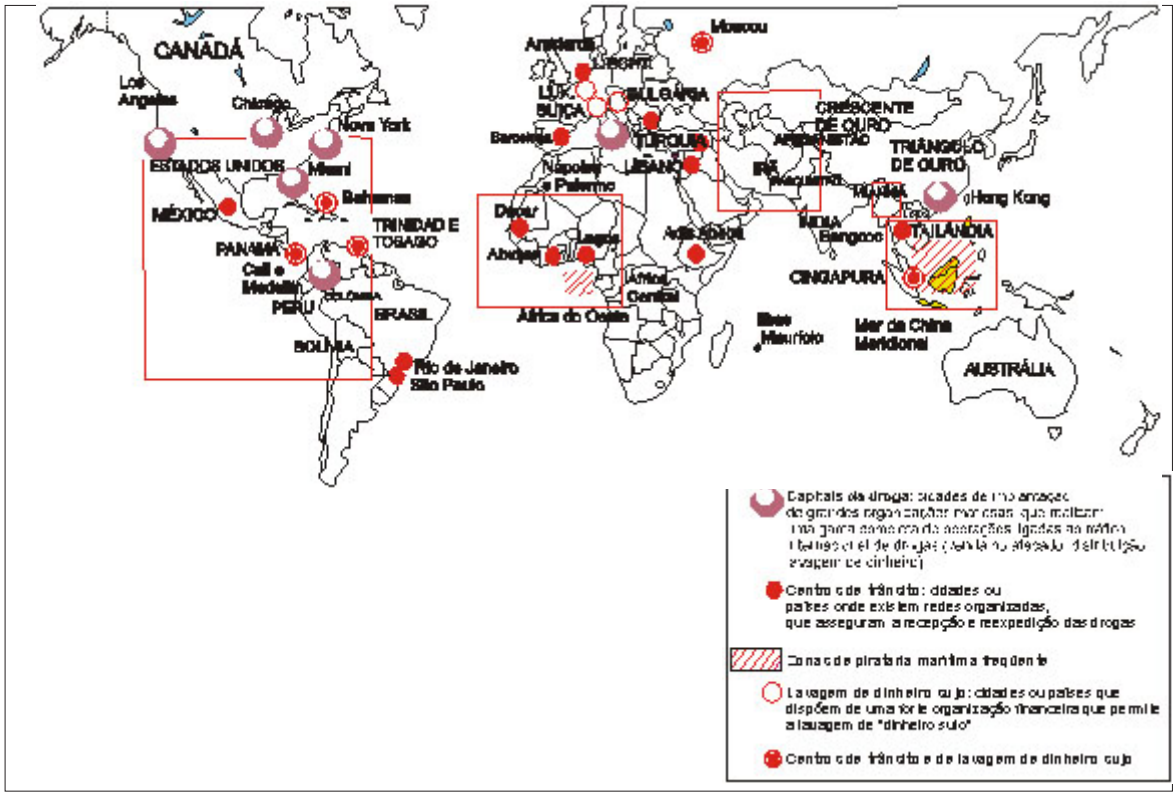


VESENTINI, J.W. *Sociedade e espaço:* Geografia geral do Brasil. São Paulo: Ática, 2000. p. 99. (Adaptado)

Marque a alternativa **INCORRETA**.

A) A droga transformou-se em uma questão de poder tão importante que hoje ameaça a soberania de alguns Estados, como a Colômbia, por exemplo.

B) As organizações criminosas internacionalizam-se como as firmas multinacionais, estabelecendo uma rede mundial com seus principais centros de poder localizados, exclusivamente, nos países do Sul subdesenvolvido.

C) A globalização torna o mundo mais integrado e ao mesmo tempo acentua as desigualdades sociais, facilitando, assim, o recrutamento de trabalhadores ou traficantes em qualquer parte do planeta, seja nos países do Norte (desenvolvidos), seja nos países do Sul (subdesenvolvidos).

D) As cidades brasileiras, que aparecem no mapa como importantes pontos da rede internacional do crime, são duas metrópoles globais.