LINGUAGENS

Brincando com fogo

1º§ No dia 18 de fevereiro, a Itália tinha três casos de coronavírus e nenhuma morte. Vida normal. Três semanas depois, a Itália tem mais de 10 mil casos com 631 mortes. O sistema de saúde das áreas mais afetadas está em colapso: pacientes são atendidos nos corredores de hospitais, praticamente não há mais leitos de UTI para internar pacientes mais graves e muitos deles, entubados, são tratados em salas de operação convertidas em UTIs. Para tentar retardar o alastramento da doença, a Itália colocou 60 milhões em isolamento e o país vive situação de caos. Da normalidade ao caos em 21 dias.

2º§ Também é fato que o Estado de São Paulo, com 44 milhões de habitantes, tinha, em 09 de março, 19 casos de coronavírus e 302 suspeitas. Isso demonstra que São Paulo ou outra cidade brasileira podem se encontrar em situação semelhante em três semanas. Veja bem: isso não quer dizer que teremos uma epidemia em três semanas, mas demonstra, sem sombra de dúvida, que essa é uma possibilidade real. Difícil de aceitar, mas absolutamente real.

3º§ Diante dessa possibilidade, há duas posturas possíveis. A primeira é esperar e ver se essa possibilidade se torna real. Nessa postura, à medida que o cenário piorar reagiremos da melhor forma possível. É a típica reação de governos brasileiros: nomeio uma comissão para não dizer que não estou preocupado, divulgo algumas estatísticas, uma vez ao dia, testo algumas pessoas. Mas investimentos e medidas concretas deixo para depois, ou porque sou relapso ou porque tudo é muito difícil por aqui. Afinal, em três semanas talvez nada aconteça, Deus é brasileiro. A outra possibilidade é implementar de antemão um sistema capaz de lidar com um número grande de casos de modo a minimizar a possibilidade de colapso do sistema de saúde quando a epidemia chegar. É o que Inglaterra, França e Alemanha estão fazendo há mais de um mês. Mas o prazo é curto, são semanas para agir, não meses ou anos.

4º§ A primeira providência é proteger os médicos e todo o corpo técnico dos postos de saúde e hospitais. Para isso, é preciso considerar todo caso de gripe viral como potencial caso de coronavírus e não somente viajantes que vieram do exterior. Isso quer dizer máscaras, luvas e todo o resto. Na Inglaterra, se você acha que pode ter coronavírus, não deve ir a um centro de saúde, você liga e alguém te testa em casa. Isso porque, tanto na China como em outros países, os primeiros casos que chegaram sem serem identificados acabaram infectando médicos e enfermeiros, o que, de saída, debilita o sistema de saúde.

5º§ Dos casos de coronavírus, aproximadamente 80% podem ser tratados em casa e a pessoa se recupera em uma ou duas semanas. Essas pessoas precisam ser identificadas, isoladas e seus contatos precisam ser testados. De novo a necessidade de um sistema de testes robusto. Os outros 20% precisam de tratamento hospitalar. O principal problema são os 6% de casos que precisam ser tratados com oxigênio e grande parte deles precisa ser entubada. Essas pessoas precisam de leitos de UTI e respiradores. Dois terços dessas pessoas (4%) se recuperam e as estatísticas mostram que 2% morrem.

6º§ Os países criaram protocolos para cuidar de pacientes, sistemas para monitorar pessoas em quarentena, credenciamentos de médicos e enfermeiras aposentados, e um sistema sofisticado de informação ao público. Depois de tudo isso, países como Inglaterra e Alemanha avaliam que estão parcialmente preparados para enfrentar o número de casos que seus epidemiologistas acreditam que virão a ocorrer.

7º§ Que eu saiba, no Brasil, nem sequer decidimos possíveis cenários que podemos enfrentar. Serão 10 mil casos, 100 mil ou 1 milhão em 2020? Estamos esperando para ver. Estamos brincando com fogo e provavelmente vamos nos queimar.

Fernando Reinach Adaptado de O Estado de S. Paulo. Disponível em https://saude.estadao.com.br/noticias/geral,brincando-com-fogo. Acesso em: 10 de mar 2020.

QUESTÃO 01

No título, o autor adota expressão de uso corrente.
Essa expressão critica uma atitude de:

- menosprezar um perigo iminente
- desejar um acidente corretivo
- recuperar um erro passado
- estimular um ato cauteloso

QUESTÃO 02

No primeiro parágrafo, o autor introduz comentários por meio dos seguintes trechos:

Vida normal.
Da normalidade ao caos em 21 dias.

Esses comentários assumem a função, no contexto, de:

- questionar as iniciativas tomadas
- omitir as verdadeiras causas da crise
- enfatizar a rapidez das transformações
- reforçar as consequências econômicas

QUESTÃO 03

O sistema de saúde das áreas mais afetadas está em colapso: pacientes são atendidos nos corredores de hospitais, praticamente não há mais leitos de UTI para internar pacientes mais graves (...)(1°§)

No trecho, os dois-pontos podem ser substituídos, mantendo o sentido global da frase, pela seguinte expressão:

- se bem que
- uma vez que
- contanto que
- ao passo que

QUESTÃO 04

Os dois primeiros parágrafos apresentam a discussão a ser desenvolvida no texto. A relação de coerência estabelecida entre esses dois parágrafos pode ser resumida do seguinte modo:

- sugere-se a aproximação entre as experiências relatadas
- indica-se a superioridade do padrão de conduta brasileiro
- ressalta-se a postura alarmista dos meios de comunicação
- aponta-se a existência de modelos opostos de atendimento

QUESTÃO 05

No segundo parágrafo, o emprego da expressão *"veja bem"* sugere uma orientação de leitura do trecho, acentuando uma atitude de:

- revolta
- retratação
- ponderação
- negacionismo

QUESTÃO 06

No terceiro parágrafo, o autor assume a primeira pessoa para formular uma crítica. Essa crítica se baseia na seguinte ideia:

- a ausência de orientação é suficiente
- os trabalhadores são privilegiados
- o cidadão deve fazer a sua parte
- as medidas efetivas são adiadas

QUESTÃO 07

No quarto parágrafo, o autor formula uma série de recomendações.
Para sustentar essas recomendações, o autor adota uma estratégia argumentativa de:

- narrativa pessoal
- pergunta retórica
- gradação de elementos
- exemplificação de casos

REDAÇÃO

PROPOSTA DE REDAÇÃO

Fernando Reinach discute os desafios impostos no combate ao SARS-CoV-2, ainda no início da infecção no Brasil.
Apresente e defenda seu ponto de vista, em um texto dissertativo-argumentativo autoral, **entre 250 e 350 PALAVRAS**, sobre a seguinte questão:

O desafio imposto pelo SARS-CoV-2 resultará em mudanças significativas nos valores sociais?

Utilize a norma-padrão da língua e atribua um título ao seu texto.

Vale relembrar que será atribuída nota 0 (zero), à redação:

- em branco;
- que não atenda ao número mínimo de palavras solicitado na proposta de redação;
- que represente cópia dos textos presentes no caderno de questões ou ainda transcrição de textos já existentes em outros domínios discursivos, configurando plágio;
- que não aborde o tema;
- que seja escrita em outra estrutura textual que não atenda à estrutura dissertativa; ou ainda
- que tenha intenção de ofender o processo de seleção como um todo ou quaisquer umas das partes nele envolvido.

ESPANHOL

Teléfono, chat o video: las nuevas vías de atención médica para los pacientes

Por Michelle Quinn
25 Abril 2020 09:25 AM

1°§ Cuando la pandemia de COVID-19 golpeó a Estados Unidos a mediados de marzo, las visitas a los consultorios médicos cayeron precipitadamente a medida que las personas se quedaban en casa para protegerse del virus.

2°§ Pero la orden de quedarse en casa ha estimulado a las personas a buscar ayuda médica de otra manera: hablar con un médico por teléfono, correo electrónico o video, según un nuevo estudio.

3°§ Ahora, el 30% de todas las visitas ambulatorias son televisadas, en comparación con menos del 1% a principios de marzo, según investigadores de la Universidad de Harvard y Phreesia, una compañía de tecnología de atención médica.

4°§ "Ese es un cambio dramático", dijo Ateev Mehrotra, profesor de la Facultad de Medicina de Harvard y uno de los autores del estudio. "Esos son los tipos de cambios que esperamos en una década, no en semanas".

5°§ La comunicación electrónica con un médico no es nueva. Con algunas especialidades como la dermatología y la salud mental, las citas telefónicas o por video son comunes.

6°§ En muchas comunidades rurales de EE.UU., que han visto una disminución en el número de hospitales y médicos, la telemedicina ha sido un salvavidas.

7°§ Pero cuando se trata de atención primaria, los médicos, los pacientes y los reguladores se han quedado con la forma en que la atención médica se ha brindado para siempre: reuniones en persona.

8°§	"Si necesito hacer una inyección, si necesito hacer un procedimiento menor, no voy a poder hacerlo por video o por teléfono", dijo. "Y así, en aquellas situaciones donde hay necesidades urgentes, llevaríamos al paciente a vernos".
9°§	Mehrotra, el profesor de Harvard, dice que los médicos y pacientes están adoptando la telemedicina ahora, por necesidad, pero también se están dando cuenta de sus límites.
10°§	"Dado lo que he escuchado de los médicos que lo han intentado, tengo que pensar que esto acelerará el crecimiento en el período posterior a la pandemia", dijo. "Pero también escucho de muchos médicos: "Es genial, pero me gustan las visitas en persona. No puedo hacer las pruebas, no puedo hacer el examen completo".
11°§	Mehrotra cuestiona si la adopción generalizada de telemedicina, pospandémica, es el curso correcto para la atención médica de EE.UU.
12°§	Pero un lugar donde la telemedicina podría dar grandes pasos, dijo, es en las zonas rurales de los países en desarrollo, lugares donde el acceso a la atención médica puede ser difícil.
13°§	"La telemedicina tiene un gran potencial en ese contexto", dijo. "Puede salvar vidas".

Adaptado de: https://www.voanoticias.com/coronavirus/telefono-chat-o-video-las-herramientas-de-los-medicos-para-atender-sus-pacientes. Accedido en 30 sep 2020.

QUESTÃO 08

El texto tiene como tema principal:

el uso de la telemedicina en la pandemia
el funcionamiento de la atención médica en línea
las dificultades de los médicos delante el coronavirus
los problemas de los pacientes en las consultas en línea

QUESTÃO 09

Según el profesor consultado, la telemedicina:

- es el futuro de la medicina
- puede ser una opción en zonas rurales
- mejoró admirablemente en la pandemia
- sirve solamente para los casos de atención primaria

QUESTÃO 10

El texto trae puntos de vista distintos sobre el uso de la telemedicina en el presente y en el futuro.

Un conector que explicita la oposición de ideas en el texto es:

- si
- pero
- ahora
- en comparación

INGLÊS

How to make telehealth more permanent after COVID-19

Nicol Turner Lee and Niam Yaraghi
Friday, September 4, 2020

1°§ The coronavirus outbreak, or COVID-19, has fundamentally transformed our lives and communities, contributing to economic declines, disruptions in schooling, and distressed hospital systems. However, the pandemic has generated some silver linings, including the widespread adoption of telehealth that has helped to mitigate the risk of community spread by reducing unnecessary hospital visits and ensuring real-time access to medical providers for millions of Americans. According to a report by McKinsey, in the aftermath of COVID-19 epidemic, medical providers have rapidly scaled their telehealth offerings and are seeing 50 to 175 times the number of patients via remote access platforms than they did before. Some patients have even come to prefer virtual office visits as medical providers have been less resistant to the change and even more willing to administer remote care from an internet-enabled device.

2°§ [...] Early reports indicate various benefits from cost reduction in both medical and mental services to quality improvement, as well as increased patient satisfaction. But given the ravaging effects of the pandemic on U.S. citizens and the focus on health care leading up to the national election, will telehealth still be available, or potentially be made permanent, as an option for patients in need of immediate, primary, or secondary care? Will previous regulatory guardrails be reinstated on emerging models of health care delivery, potentially suppressing the number of providers and patients accessing such resources?

3°§ To start, certain conditions must be instituted to ensure long-term delivery of telehealth services, starting with access to high-speed broadband among patients and providers, national interoperability, new fraud detection methods, and more lenient and favorable federal and state policies towards its use. Further, as people of color, especially African Americans, become disproportionately impacted by COVID-19 in both infections and deaths, the adoption of telehealth practices to address and potentially reduce the immediate and long-term delivery of care will be important. Across the U.S., African Americans are dying at a rate of 88.4 deaths per 100,000 population, more than twice the rate of white Americans (40.4 deaths per 100,000 population).

Adapted from: https://www.brookings.edu/blog/techtank/2020/09/04/how-to-make-telehealth-more-permanent-after-covid-19/ Last access on 30 sept 2020.

QUESTÃO 08

Some patients have even come to prefer virtual office visits as medical providers have been less resistant to the change and even more willing to administer remote care from an internet-enabled device. (1°§)

The underlined verb forms were used to refer to an action that can be described as:

- just beginning
- almost started
- still happening
- already completed

QUESTÃO 09

The text presents many doubts about the future of telehealth, but it also mentions actions which have already been taken to guarantee its use nowadays. One of these actions which has already been taken is the following:

- positive federal and state policies towards the use of telehealth
- specific measures to reduce the number of African American deaths
- permanent federal and state legislation to regulate remote care delivery
- high-speed broadband among patients and providers throughout America

QUESTÃO 10

the pandemic has generated some silver linings (1°§)

One example of these *silver linings* presented in the text is the following:

the amount of economic declines
the decrease in remote telehealth access
the reduction of unnecessary hospital visits
the invention of a powerful internet-enabled device

QUESTÃO 11

Considere um quadrado ABCD de centro M e dois círculos de diâmetros AB e AD.
Observe na figura a seguir a região R destacada, limitada pelo lado AB do quadrado e pelos arcos $\overset{\frown}{AM}$ e $\overset{\frown}{BM}$ das circunferências.

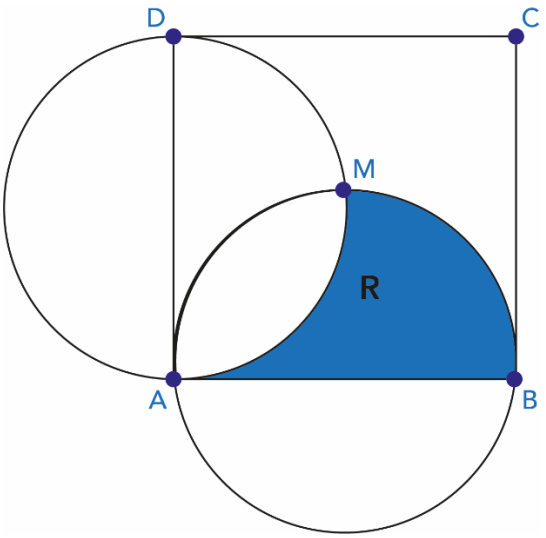

Se o lado do quadrado mede 2 dm, então a área da região R, em dm^2, é igual a:

- $\pi/4$
- $\pi/2$
- 1
- 2

QUESTÃO 12

Observe parte do gráfico cartesiano da função f definida por $f(x) = \text{sen}x$ traçado a seguir.

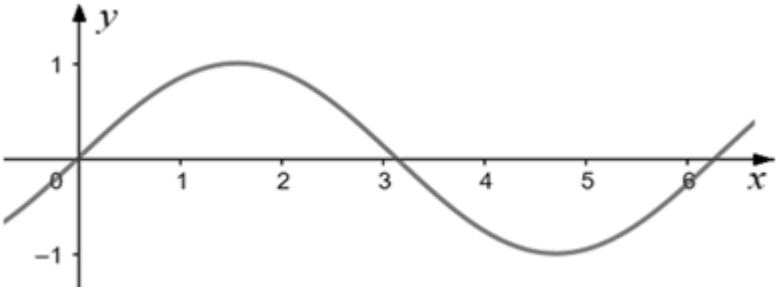

O número de soluções da equação $\text{sen}x = x^2$ é igual a:

1
2
3
4

QUESTÃO 13

Admita que a média aritmética das idades de 50 alunos do ensino médio seja 15 anos e dos 50 alunos do fundamental seja 11 anos.
Se a média aritmética das idades, em anos, dos 100 alunos considerados é igual a n, a soma dos algarismos de n é igual a:

2
3
4
5

QUESTÃO 14

Para contar cédulas de dinheiro, um banco utiliza máquinas idênticas e com a mesma produtividade da seguinte forma:

4 dessas máquinas juntas contam 1000 cédulas em 5 segundos.

Em um determinado dia, apenas 2 dessas máquinas, trabalhando juntas, contaram 3000 cédulas em **k** segundos.
O valor de **k** é igual a:

5
15
30
60

CIÊNCIAS DA NATUREZA

QUESTÃO 15

Os esteroides anabolizantes androgênicos são drogas sintéticas derivadas do hormônio testosterona e utilizados de forma ilegal para melhoria da performance esportiva. Nas células musculares humanas, a testosterona exerce sua ação por meio da interação com regiões regulatórias, estimulando a transcrição gênica.

O uso de esteroides anabolizantes resulta em ganho de força e de massa muscular devido ao efeito estimulante dessas drogas sobre o seguinte processo celular:

síntese proteica
fermentação lática
duplicação do DNA
produção de colesterol

QUESTÃO 16

Pesquisadores do Instituto Vital Brazil, laboratório oficial do governo do Rio de Janeiro, injetaram uma proteína do novo coronavírus chamada de S recombinante em cinco cavalos saudáveis (vale destacar que a partícula não é prejudicial para os animais, que não são afetados pelo vírus Sars-CoV-2).

Após 70 dias da injeção, os cavalos haviam produzido anticorpos neutralizantes contra o novo coronavírus 20 a 50 vezes mais potentes do que os presentes no plasma sanguíneo de pessoas que tiveram a Covid-19.

Adaptado de: https://revistagalileu.globo.com/Ciencia/noticia/2020/08/entenda-como-soro-obtido-de-cavalos-pode-ajudar-combater-covid-19.html. Acesso em 30 set 2020.

A transfusão dos anticorpos produzidos pelos cavalos para o sangue de seres humanos infectados pelo novo coronavírus pode ser eficaz porque essas proteínas são capazes de:

induzir reação autoimune
promover a imunidade passiva
suprimir a resposta imunológica
estabilizar a produção de antígenos

QUESTÃO 17

A investigação dos padrões de herança genética de doenças monogênicas, cujas características de transmissão seguem reconhecidamente a 1ª lei de Mendel, pode evidenciar o tipo de cromossomo alterado por uma mutação. Observe as seguintes características de transmissão de uma determinada anomalia genética:

- Todas as filhas de um homem afetado pela anomalia são também afetadas.
- A característica não é transmitida do pai para os filhos do sexo masculino.
- O cruzamento entre mulheres com a anomalia e homens normais gera 50% dos filhos afetados e 50% das filhas afetadas.

A análise das características acima permite concluir que essa anomalia está ligada ao cromossomo:

X
Y
autossomo
mitocondrial

QUESTÃO 18

A formação da urina envolve etapas como filtração, reabsorção e secreção de substâncias ao longo dos néfrons.
Nesse processo, a secreção de substâncias reguladoras do pH e da concentração de $NaC\ell$ e K^+ ocorre na seguinte região do néfron:

túbulo contorcido distal
cápsula glomerular
túbulo coletor
alça de Henle

QUESTÃO 19

De acordo com o Código Antidoping da WADA (World Anti-Doping Agency), "O atleta é responsável por tudo aquilo que consome".
Em 2016, Sharapova foi surpreendida no exame antidoping pelo uso de "Meldonium", incluído na lista de substâncias proibidas desde o final de 2015.
O fármaco atua como um agente anti-isquêmico, aumentando o aporte de oxigênio nas células.

O "Meldonium" melhora o desempenho do atleta por influenciar diretamente no seguinte elemento figurado do sangue:

- eritrócito
- leucócito
- monócito
- trombócito

QUESTÃO 20

O transporte de substâncias pela membrana plasmática pode ser realizado de modo passivo (osmose, difusão simples e difusão facilitada) ou de modo ativo. A figura abaixo ilustra a taxa de transporte através da membrana quanto à diferença de concentração entre os meios extracelular e intracelular.

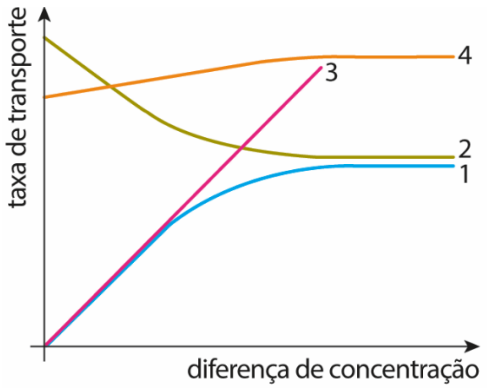

O processo de transporte ativo está representado pelo número:

- 1
- 2
- 3
- 4

QUESTÃO 21

Um professor de física apresentou o experimento sobre eletrostática, mostrado no vídeo.

Captura de imagem de vídeo

Adaptado de: https://youtu.be/fDxf4ZGHA9E . Acesso em 30 set 2020.

É possível observar a latinha de refrigerante rolar sobre a mesa apenas aproximando um bastão de PVC eletrizado.

Em relação ao movimento da lata de alumínio sobre a mesa, afirma-se que esse rolamento da lata é:

- mantido pela força Normal e pela força Peso
- garantido pelas forças eletrostática e de atrito
- garantido pelas forças eletrostática e magnética
- mantido pela força centrípeta e pela força de atrito

QUESTÃO 22

O vídeo mostra um experimento didático realizado na USP, em que podemos observar um conjunto de 4 discos, sendo elevado por outro conjunto de 2 discos. Considere todos os discos com massas idênticas.

Captura de imagem de vídeo



Adaptado de: https://youtu.be/vZLUzu6_xmc. Acesso em 30 set 2020.

O princípio físico observado está enunciado em:

Todo corpo totalmente imerso ou parcialmente imerso em um líquido qualquer fica sujeito a uma força vertical de baixo para cima, igual ao peso da porção de líquido deslocado pelo corpo.

A pressão absoluta, em um ponto de um líquido homogêneo e incompressível, não depende da forma do recipiente.

O volume de uma dada quantidade de fluido varia inversamente com a pressão sob temperatura constante.

A diferença de pressão é integralmente transmitida a todos os pontos do fluido em repouso.

QUESTÃO 23

A higenamina, cuja fórmula estrutural é representada abaixo, é um estimulante encontrado em algumas frutas, como a graviola.

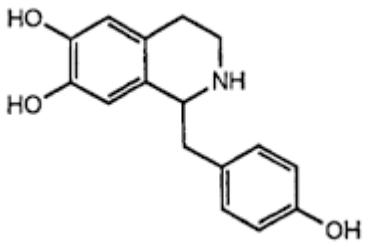

A função orgânica oxigenada presente na higenamina é nomeada:

- éter
- fenol
- cetona
- aldeído

QUESTÃO 24

Em um estudo, realizou-se a reação química representada pela seguinte equação termoquímica:

$$CH_4\,(g) + 2\,O_2\,(g) \rightarrow CO_2\,(g) + 2\,H_2O\,(\ell) \qquad \Delta H^0 = -290\ kJ/mol$$

O ΔH^0 dessa reação é classificado como entalpia-padrão de:

- formação
- dissolução
- combustão
- neutralização

QUESTÃO 25

Um medicamento deve ser dissolvido em uma solução salina com pH neutro. Para o preparo dessa solução, estão disponíveis os seguintes solutos: $NaC\ell$, HNO_3, CaO e $Mg(OH)_2$.

O soluto a ser utilizado nesse preparo corresponde a:

- $NaC\ell$
- HNO_3
- CaO
- $Mg(OH)_2$

QUESTÃO 26

Em situações de excesso de exercícios físicos, pode ocorrer a formação de ácido láctico nas fibras musculares, conforme representada na seguinte equação química:

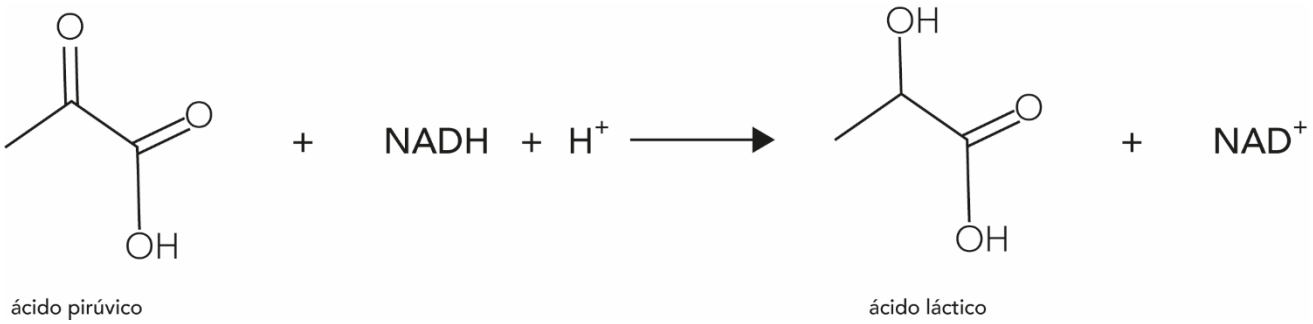

A conversão de ácido pirúvico em ácido láctico corresponde a uma reação química de:

- substituição
- eliminação
- oxidação
- redução

QUESTÃO 27



Adaptado de The Economist. Disponível em: economist.com. Acesso em 27 fev 2020.

A caracterização atribuída à China e à Rússia, nos quadrinhos, é justificável, respectivamente, pelos seguintes eventos de anexação territorial com apoio militar:

Tibet em 1950 – Crimeia em 2014
Taiwan em 1949 – Hungria em 1956
Manchúria em 1931 – Chechênia em 2008
Hong Kong em 1987 – Tchecoslováquia em 1968

QUESTÃO 28

Pessoal Ocupado – Grau de parentesco com o produtor agropecuário

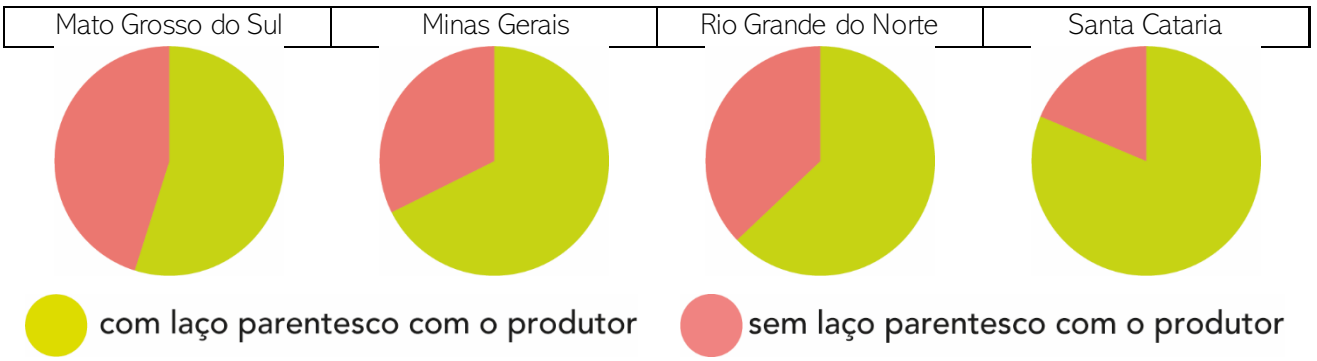

Adaptado de Censo Agropecuário 2017. Disponível em censos.ibge.gov.br. Acesso em 24 fev 2020.

Infere-se, a partir dos dados do gráfico, que o estado com maior proporção de estabelecimentos rurais dedicados à agropecuária empresarial é:

Minas Gerais
Santa Catarina
Mato Grosso do Sul
Rio Grande do Norte

QUESTÃO 29

Em julho de 1938, o cônsul do Brasil em Budapeste, Mário Moreira da Silva, enviou ao ministro das Relações Exteriores, Oswaldo Aranha, uma circular secreta em que informava ter recusado a concessão de vistos a 47 pessoas "declaradamente de origem semita" que buscavam migrar para o Brasil.
Não era uma posição isolada no governo. Documentos diplomáticos compilados por Maria Luiza Tucci Carneiro, professora do Departamento de História da USP, mostram que o Brasil rejeitou ao menos 16 mil pedidos de visto feitos por judeus que fugiam do Holocausto ou tentavam reconstruir suas vidas após a Segunda Guerra.

Adaptado de BBC. Disponível em: bbc.com. Acesso em 10 jul 2020.

As ações descritas na reportagem revelam a seguinte característica política do governo brasileiro à época:

- preponderância germanófila
- tendência isolacionista
- orientação xenofóbica
- influência integralista

QUESTÃO 30

"Muitas vezes, no meu próprio país, passo por estrangeira por causa da minha cor, do cabelo encaracolado, e tenho que dizer com orgulho que sou chilena, tendo que suportar a descrença de muitos e muitos."
Essas palavras da ativista Marta Salgado descrevem a realidade que muitas pessoas enfrentam tanto no Chile quanto na vizinha Argentina, países onde a seguinte frase se tornou comum: "Aqui não há negros". Segundo registros históricos, há 200 anos, em cidades como Buenos Aires e Santiago, os negros chegaram a representar mais de 20% da população, número que pode chegar a 60% em outros locais onde negros escravizados eram centrais para economias locais.

Adaptado de BBC. Disponível em: bbc.com. Acesso em 10 jul 2020.

A situação descrita na reportagem é explicada pelo seguinte processo histórico na formação do Chile e da Argentina:

- enaltecimento da ancestralidade nativa
- apagamento da contribuição africana
- desvalorização da herança europeia
- reconhecimento da origem criola