VESTIBULAR_2019.1

PROVA OBJETIVA

PROVA DE REDAÇÃO

25/11/2018

UNIVERSIDADE DE VASSOURAS

Este caderno, com 32 páginas numeradas, contém 60 questões objetivas das seguintes áreas: Linguagens; Matemática; Ciências da Natureza; Ciências Humanas. A proposta de tema para a prova de Redação está na página 7 e a Classificação Periódica dos Elementos, na página 31. Além deste caderno, você está recebendo, também, uma Folha de Redação, para desenvolver o tema proposto, e um Cartão de Respostas.

Observe as seguintes instruções, antes de iniciar a prova:

- Após a autorização para abrir este caderno, verifique se a impressão, a paginação e a numeração das questões estão corretas. **Caso observe qualquer erro, notifique o fiscal.**
- Verifique, no Cartão de Respostas, se seu nome, número do CPF, número do documento de identidade, data de nascimento, número de inscrição e opção de língua estrangeira estão corretos. **Se houver erro, notifique o fiscal.**
- As questões de números 16 a 20, da área de Linguagens, deverão ser respondidas de acordo com sua opção de língua estrangeira: Espanhol ou Inglês.
- Use apenas caneta de corpo transparente, preta ou azul, para escrever a redação, assinar o cartão e marcar suas respostas, cobrindo totalmente o espaço que corresponde à letra da alternativa que melhor responde a cada questão.
- Além de sua assinatura, da transcrição da frase e da marcação das respostas, nada mais deve ser escrito ou registrado no cartão, que não pode ser dobrado, amassado, rasurado ou manchado.
- Não assine a Folha de Redação, nem escreva nela seu nome.

Ao terminar a prova, entregue ao fiscal este caderno, a Folha de Redação e o Cartão de Respostas.

INFORMAÇÕES GERAIS

O tempo disponível para fazer as provas é de quatro horas e trinta minutos. Nada mais poderá ser registrado após esse tempo.

É vedada ao candidato a possibilidade de copiar suas respostas.

Nas salas de prova, não será permitido aos candidatos portar arma de fogo, fumar, usar relógio ou boné de qualquer tipo e utilizar lápis, lapiseiras, borrachas, corretores ortográficos líquidos ou similares.

Será eliminado do Vestibular da Universidade de Vassouras o candidato que, durante a prova, utilizar qualquer instrumento de cálculo e/ou qualquer meio de obtenção de informações, eletrônicos ou não, tais como calculadoras, agendas, computadores, rádios, telefones, *smartphones*, *tablets*, receptores, livros e anotações manuscritas ou impressas.

Será também eliminado o candidato que se ausentar da sala levando consigo qualquer material de prova.

BOA PROVA!

ECONRIO

TEXTO_1

DIVAGAÇÕES SOBRE AS ILHAS

Quando me acontecer alguma pecúnia[1], passante de um milhão de cruzeiros, compro uma ilha; não muito longe do litoral, que o litoral faz falta; nem tão perto, também, que de lá possa eu aspirar a fumaça e a graxa do porto. Minha ilha (e só de a imaginar já me considero seu habitante) ficará no justo ponto de latitude e longitude que, pondo-me a coberto de ventos, sereias e pestes, nem me afaste demasiado dos homens nem me obrigue a praticá-los diuturnamente. Porque esta é a ciência e, direi, a arte do bem viver; uma fuga relativa, e uma não muito estouvada confraternização.

De há muito sonho esta ilha, se é que não a sonhei sempre. Se é que a não sonhamos sempre, inclusive os mais agudos participantes. Objetais-me: "Como podemos amar as ilhas, se buscamos o centro mesmo da ação?" Engajados, vosso engajamento é a vossa ilha, dissimulada e transportável. Por onde fordes, ela irá convosco. Significa a evasão daquilo para que toda alma necessariamente tende, ou seja, a gratuidade dos gestos naturais, o cultivo das formas espontâneas, o gosto de ser um com os bichos, as espécies vegetais, os fenômenos atmosféricos. Substitui, sem anular. Que miragens vê o iluminado no fundo de sua iluminação?... Supõe-se político, e é um visionário. Abomina o espírito de fantasia, sendo dos que mais o possuem. Nessa ilha tão irreal, ao cabo, como as da literatura, ele constrói a sua cidade de ouro, e nela reside por efeito da imaginação, administra-a, e até mesmo a tiraniza. Seu mito vale o da liberdade nas ilhas. E, antagonista do mundo burguês, que outra coisa faz senão aplicar a técnica do sonho, com que os sensíveis dentre os burgueses se acomodam à realidade, esquecendo-a?

A ilha que traço agora a lápis neste papel é materialmente uma ilha, e orgulha-se de sê-lo. Pode ser abordada. Não pode ser convertida em continente. Emerge do pélago[2] com a graça de uma flor criada para produzir-se sobre a água. Marca assim o seu isolamento, e como não tem bocas de fogo nem expedientes astuciosos para rechaçar o estrangeiro, sucede que este isolamento não é inumano. Inumano seria desejar, aqui, dos morros litorâneos, um cataclismo que sovertesse[3] tão amena, repousante, discreta e digna forma natural, inventada para as necessidades do ser no momento exato em que se farta de seus espelhos, amigos como inimigos.

E por que nos seduz a ilha? As composições de sombra e luz, o esmalte da relva, a cristalinidade dos regatos – tudo isso existe fora das ilhas, não é privilégio delas. A mesma solidão existe, com diferentes pressões, nos mais diversos locais, inclusive os de população densa, em terra firme e longa. Resta ainda o argumento da felicidade: "aqui eu não sou feliz", declara o poeta, para enaltecer, pelo contraste, a sua Pasárgada[4]: mas será que se procura realmente nas ilhas a ocasião de ser feliz, ou um modo de sê-lo? (...).

CARLOS DRUMMOND DE ANDRADE
Adaptado de *Poesia e prosa*. Rio de Janeiro: Nova Aguilar, 1979.

[1] Pecúnia: pagamento.
[2] Pélago: profundidade.
[3] Soverter: fazer desaparecer.
[4] Pasárgada: localidade fictícia em poema de Manuel Bandeira onde o eu lírico seria sempre feliz.

QUESTÃO_01

No texto, observa-se a criação de ilhas por meio do próprio processo de escrita do autor.
Esse processo está sintetizado no seguinte trecho:

(A) De há muito sonho esta ilha, se é que não a sonhei sempre. (ℓ. 7)

(B) Nessa ilha tão irreal, ao cabo, como as da literatura, (ℓ. 14)

(C) A ilha que traço agora a lápis neste papel é materialmente uma ilha, (ℓ. 18)

(D) E por que nos seduz a ilha? As composições de sombra e luz, (ℓ. 25)

QUESTÃO__02

No primeiro parágrafo, o autor aponta seu principal interesse em habitar uma ilha, que é a conciliação dos seguintes elementos:

(A) litoral – porto
(B) latitude – longitude
(C) habitante – homens
(D) fuga – confraternização

QUESTÃO__03

No segundo parágrafo, há a simulação de um diálogo entre o autor e seus possíveis leitores.
A referência a todos esses enunciadores está presente em:

(A) Se é que a não sonhamos sempre, inclusive os mais agudos participantes. (ℓ. 7-8)
(B) Engajados, vosso engajamento é a vossa ilha, dissimulada e transportável. (ℓ. 9)
(C) Por onde fordes, ela irá convosco. (ℓ. 9-10)
(D) Que miragens vê o iluminado no fundo de sua iluminação? (ℓ. 12-13)

QUESTÃO__04

Supõe-se político, e é um visionário. Abomina o espírito de fantasia, sendo dos que mais o possuem. (ℓ. 13-14)

No fragmento acima, há pares de ideias articuladas por uma relação lógica de

(A) oposição
(B) conclusão
(C) conformidade
(D) proporcionalidade

QUESTÃO__05

E, antagonista do mundo burguês, que outra coisa faz senão aplicar a técnica do sonho, com que os sensíveis dentre os burgueses se acomodam à realidade, esquecendo-a? (ℓ. 16-17)

Os trechos sublinhados apresentam dois perfis de sujeitos, cada um mantendo determinada atitude frente à realidade.
Tais atitudes se caracterizam por estabelecerem, entre si, relação de

(A) indiferença
(B) semelhança
(C) ambiguidade
(D) reciprocidade

COM BASE NO TRECHO ABAIXO, RESPONDA ÀS QUESTÕES 06 E 07.

Inumano seria desejar, aqui, dos morros litorâneos, um cataclismo que sovertesse tão amena, repousante, discreta e digna forma natural, inventada para as necessidades do ser no momento exato em que se farta de seus espelhos, amigos como inimigos. (ℓ. 22-24)

QUESTÃO__06

A palavra ***seus*** estabelece relação de posse entre ***espelhos*** e a palavra

(A) ser
(B) amigos
(C) inimigos
(D) inumano

QUESTÃO__07

No trecho, a palavra ***espelhos*** representa um uso da seguinte figura de linguagem:

(A) ironia
(B) metáfora
(C) metonímia
(D) eufemismo

QUESTÃO__08

mas será que se procura realmente nas ilhas a ocasião de ser feliz, ou um modo de sê-lo? (ℓ. 29)

Com base na estrutura alternativa, presente na pergunta retórica, pode-se inferir que a posição defendida em relação à felicidade é de

(A) certeza de encontrá-la
(B) possibilidade de criá-la
(C) necessidade de aceitá-la
(D) obrigação de reconhecê-la

QUESTÃO__09

Adaptado de nanihumor.com/2013/10/solidao.html.

Um trecho do texto de Carlos Drummond de Andrade que expressa uma possível compreensão do cartum de Nani é

(A) Significa a evasão daquilo para que toda alma necessariamente tende, (ℓ. 10)
(B) e nela reside por efeito da imaginação, administra-a, e até mesmo a tiraniza. (ℓ. 15)
(C) Emerge do pélago com a graça de uma flor criada para produzir-se sobre a água. (ℓ. 19-20)
(D) A mesma solidão existe, com diferentes pressões, nos mais diversos locais, (ℓ. 26-27)

TEXTO_2

A SOLIDÃO É A GRANDE AMEAÇA

Quando eu era jovem, eu nunca tive o conceito de "redes". Eu tinha o conceito de laços humanos, de comunidades, esse tipo de coisa, mas não redes. Qual é a diferença entre comunidade e rede? A comunidade precede você. Você nasce numa comunidade. Por outro lado, temos a rede.

O que é uma rede? Ao contrário da comunidade, a rede é feita e mantida viva por duas atividades diferentes. Uma é conectar e a outra é desconectar. E eu acho que a atratividade do novo tipo de amizade, o tipo de amizade do Facebook, como eu a chamo, está exatamente aí. Que é tão fácil de desconectar. É fácil conectar, fazer amigos. Mas o maior atrativo é a facilidade de se desconectar.

Imagine que estamos falando não de amigos *on-line*, conexões *on-line*, compartilhamento *on-line*, mas sim de conexões *off-line*, conexões de verdade, frente a frente, corpo a corpo, olho no olho. Neste caso, romper relações é sempre um evento muito traumático. Você tem que encontrar desculpas, você tem que se explicar, você tem que mentir com frequência e, mesmo assim, você não se sente seguro, porque seu parceiro diz que você não tem direitos, que você é um porco etc. É difícil. Na internet, é tão fácil, você só pressiona delete e pronto. Em vez de 500 amigos, você terá 499, mas isso será apenas temporário, porque amanhã você terá outros 500, e isso corrói muito os laços humanos.

Os laços humanos são uma mistura de bênção e maldição.

Bênção porque é realmente muito prazeroso, é muito satisfatório ter outro parceiro em quem confiar e fazer algo por ele ou ela. É um tipo de experiência indisponível para a amizade no Facebook; então, é uma bênção... E eu acho que muito jovem não tem nem mesmo consciência do que eles realmente perderam, porque eles nunca vivenciaram esse tipo de situação.

Por outro lado, há a maldição, pois quando você entra no laço, você espera ficar lá para sempre. Você jura, você faz um juramento: até que a morte nos separe, para sempre. O que isso significa? Significa que você empenha o seu futuro. Talvez amanhã, ou no mês que vem, ou no ano que vem, haja novas oportunidades. Agora você não consegue prevê-las, porque você ficará preso aos seus antigos compromissos, às suas antigas obrigações.

Então, trata-se de uma situação muito ambivalente e, consequentemente, de um fenômeno curioso dessa pessoa solitária numa multidão de solitários. Estamos todos numa solidão e numa multidão ao mesmo tempo.

ZYGMUNT BAUMAN
Adaptado de fronteiras.com/artigos/zygmunt-bauman-la-solidao-e-a-grande-ameaca.

QUESTÃO_10

Imagine que estamos falando não de amigos* on-line*, conexões* on-line*, compartilhamento* on-line*, mas sim de conexões* off-line*, conexões de verdade, frente a frente, corpo a corpo, olho no olho. (ℓ. 8-9)

Para delimitar o sentido de um termo, observa-se, no trecho acima, o emprego do seguinte procedimento:

(A) dedução
(B) gradação
(C) reformulação
(D) generalização

QUESTÃO 11

Os laços humanos são uma mistura de bênção e maldição. (ℓ. 15)

Em parágrafo subsequente, a perspectiva de ***maldição*** apontada pelo autor pode ser justificada pelo seguinte contexto:

(A) simultaneidade das ações
(B) culpabilidade das pessoas
(C) responsabilidade dos internautas
(D) imprevisibilidade dos acontecimentos

QUESTÃO 12

A palavra "muito" pode expressar sentidos diversos, como intensificação e quantificação.
Um exemplo em que "muito" indica quantificação está presente em:

(A) isso corrói muito os laços humanos (ℓ. 14)
(B) é muito satisfatório ter outro parceiro (ℓ. 16)
(C) muito jovem não tem nem mesmo consciência (ℓ. 18)
(D) trata-se de uma situação muito ambivalente (ℓ. 25)

QUESTÃO 13

Talvez amanhã, ou no mês que vem, ou no ano que vem, haja novas oportunidades. Agora você não consegue prevê-las, porque você ficará preso aos seus antigos compromissos, (ℓ. 22-24)

De modo a manter o sentido original do fragmento, o conector que poderia introduzir a frase sublinhada acima é

(A) se
(B) ou
(C) porém
(D) conforme

TEXTO_3

malvados.com.br

QUESTÃO_14

As três falas do personagem visualizado nos quadrinhos apresentam a seguinte sequência de ideias:

(A) causa – efeito
(B) condição – finalidade
(C) concessão – contradição
(D) constatação – explicação

QUESTÃO_15

Há modalização na fala de personagem no seguinte trecho:

(A) É uma multidão de solitários.
(B) Ainda bem que temos a internet.
(C) É uma tecnologia que combate a solidão...
(D) ...mantendo todo mundo solitário.

PROPOSTA DE REDAÇÃO

O texto de Carlos Drummond de Andrade aborda a tensão entre a necessidade de uma vida em sociedade e a preservação dos limites de uma vida individual, enquanto o texto de Zygmunt Bauman destaca as tensões entre as noções de "comunidade" e "rede". A partir dessas leituras e de suas reflexões pessoais, elabore um texto dissertativo-argumentativo em que discuta **até que ponto, na contemporaneidade, é possível construir laços que promovam o desenvolvimento pessoal**.

Seu texto deve respeitar os seguintes itens:

- conter título;
- ter entre 20 e 30 linhas;
- atender à norma-padrão da língua;
- apresentar estrutura argumentativa completa.

ENFERMEDADES ERRADICADAS REBROTAN POR LA MOVILIDAD Y LOS MOVIMIENTOS ANTIVACUNAS

El sarampión, la tos ferina, la polio o la escarlatina resurgen en los últimos años en Tarragona. Hay colectivos que bajan la guardia en la inmunización. Los flujos migratorios son claves

Raúl Cosano

26 de Enero de 2018 - 09:00 hs

La humanidad sólo ha podido erradicar por completo dos enfermedades: la viruela y la peste bovina. El resto, por desfasadas o anacrónicas que parezcan, siguen latentes, con una incidencia cambiante que en los últimos años parece resurgir. Hay que partir, antes que nada, de una comparación tranquilizadora: entre 1984 y 2015 el número de casos de enfermedades vacunables en Catalunya bajó de 36.740 a 3.879.

Es una reducción de casi 33.000 casos detectados, prácticamente un 90% menos. «Cuando yo nací, hace 58 años, prácticamente todas las personas pasaban el sarampión. Pero luego llegaron a comienzos de los 80 los primeros calendarios vacunales, que progresivamente se van implantando, con algunas vacunas enormemente efectivas y altas coberturas», explica la doctora Carmen Cabezas, subdirectora general de Promoció de la Salut de la Agència de Salut Pública de Catalunya.

Entre 2014 y 2015, los casos de tos ferina en la provincia pasaron de 24 a 170; en Catalunya crecieron de 1.116 a 3.678, según el análisis del Butlletí Epidemiològic de Catalunya. El informe afirma lo siguiente en sus conclusiones: «El incremento de la tasa de incidencia de la tos ferina en 2015 ha seguido el comportamiento de aumento iniciado en 2011 como consecuencia de la reemergencia de esta enfermedad». El mismo informe es muy contundente: «En 2011 la tos ferina ha presentado comportamiento epidémico y ha multiplicado casi por cinco la tasa de incidencia de 2010».

Otra patología bajo el foco en los últimos tiempos es el sarampión, de afectación reducida pero en aumento. «Después de haber alcanzado el objetivo de eliminación del sarampión autóctono durante los primeros años de la década del 2000, en los últimos se ha vuelto a presentar en la población autóctona», dice el Butlletí.

Josep Maria Puig, secretario general de Metges de Catalunya, confirma la tendencia: «Tenemos constancia de que han vuelto enfermedades que en las sociedades ricas se podían considerar no erradicadas pero sí muy marginales. Es verdad que hay un rebrote. Hablamos de sarampión, de escarlatina, de polio, de paperas o de tos ferina. Son afecciones que a mucha gente les pueden sonar al pasado o que en el imaginario colectivo podían parecer ya erradicadas, pero no lo están».

La enorme inmunización en Catalunya puede tener un reverso negativo: «Tenemos unas cifras de vacunación muy altas y entonces esas enfermedades comienzan a no verse. La gente, de alguna manera, no se acuerda de que antes hubo polio o sarampión, y empieza a pensar que no hay que vacunarse contra eso». Se entra, por lo tanto, en una situación de desprotección. «Imaginemos que hay un 10% de niños que no se vacunan. Antes, cuando no había tanta movilidad, no suponía un problema tan importante, porque ese 10% estaba rodeado de gente que sí estaba vacunada. Si se porta la enfermedad de fuera, entonces hay más facilidad de que se infecten los que no estaban vacunados pero sí se creían protegidos», argumenta Josep Maria Puig.

Hay un factor determinante: el papel y la incidencia nada desdeñable de los colectivos antivacunas. El año pasado, el secretario de Salut Pública, el reusense Joan Guix, admitía que había médicos que desaconsejaban las vacunas y calificaba esa tendencia de «minoritaria pero no residual».

«Socialmente puede proliferar esa idea de: ¿por qué me voy a vacunar si el sarampión ya no circula? También hay gente que está en contra de poner algo artificial en su cuerpo. Piensan, por ejemplo, que el sarampión es una enfermedad de niños y que solo consiste en pasarlo mal unos días», aporta la doctora Cabezas.

Los efectos adversos que pueda tener una vacuna son mucho más improbables que los que acarrean las patologías que combaten. «En uno de cada 1.000 casos el sarampión puede acabar produciendo encefalitis, complicaciones neurológicas e incluso la muerte. Pero con la vacuna que lo combate, la triple vírica, por cada millón de casos puede haber una complicación», añade la responsable del Departament de Salut. «La visión mágica de los antivacunas ha sido perjudicial. Ha generado que haya muchos padres desinformados», denuncia Puig.

El Butlletí Epidemiològic también habla, en sus sucesivas ediciones, de un incremento de la incidencia de la rubeola entre los años 2011 y 2012, remitido sin embargo en los últimos tiempos: «Los resultados de la vigilancia de 2014 y 2015 ponen de manifiesto la buena situación de la rubeola en Catalunya».

Adaptado de www.diaridetarragona.com

QUESTÃO__16

La noticia leída anteriormente tiene como tema principal:

(A) la relación de las epidemias con la movilidad.

(B) el incremento de enfermedades antes controladas.

(C) los peligros de la no vacunación en los días actuales.

(D) la divulgación de una campaña de vacunación en Catalunya.

QUESTÃO__17

Para darle credibilidad a lo que dice en la noticia, su autor se utiliza de algunas estrategias, entre las cuales se destacan

(A) citas indirectas y leyes.

(B) relatos personales y analogías.

(C) datos numéricos y citas directas.

(D) alusiones históricas y proyecciones futuras.

QUESTÃO__18

Tomando en cuenta las características del género noticia, se puede inferir que el texto, además de informar, pretende también:

(A) convencerles a los lectores de que la no vacunación es peligrosa.

(B) ponerles a los lectores en duda sobre los informes epidemiológicos.

(C) insertarles a los lectores en el campo de la investigación epidemiológica.

(D) invitarles a los lectores a que se vacunen a lo largo de la campaña divulgada.

QUESTÃO__19

La noticia se intenta construir de modo imparcial. Sin embargo, se puede encontrar la opinión de su autor puesta explícitamente en el fragmento:

(A) "La humanidad sólo ha podido erradicar por completo dos enfermedad: la viruela y la peste bovina" (ℓ. 1).

(B) "Entre 2014 y 2015, los casos de tos ferina en la provincia pasaron de 24 a 170" (ℓ. 10).

(C) "Hay un factor determinante: el papel y la incidencia nada desdeñable de los colectivos antivacunas" (ℓ. 33).

(D) "El Butlletí Epidemiològic también habla, en sus sucesivas ediciones, de un incremento de la incidencia de la rubeola entre los años 2011 y 2012," (ℓ. 45-46).

QUESTÃO__20

La noticia afirma que

(A) la movilidad en los días de hoy es la principal razón para el incremento de las tazas de enfermedades consideradas anteriormente controladas.

(B) el control de enfermedades peligrosas por muchos años hace que la gente se olvide e de los peligros de la no vacunación.

(C) la no vacunación se deriva del hecho de que la gente hoy día está mejor informada sobre temas de salud.

(D) el flujo migratorio por el mundo vuelve el control de enfermedades imposible.

WHY THE REFUSAL TO VACCINATE YOUR CHILDREN IS DANGEROUS FOR YOUR ENTIRE COMMUNITY

January 30, 2018 […]

Let's get a few things out of the way before we begin, so we have a better chance of understanding one another: I'm a pediatrician who works in a hospital. It's true that sick kids pay my bills, but I would much rather that kids never got sick, even if it meant losing my job. (I'm adaptable. I'm sure I'd be OK.)

I'm also a person who thinks that when young people become seriously ill from diseases that might have otherwise been prevented, it's a tragedy. Pertussis outbreaks in this country are on the rise; paralytic polio quickly returned to Syria after immunization rates dropped due to the war; the measles outbreak currently taking young lives in Europe may now do the same in Texas. When children die of these diseases, it's unconscionable.

I am, as you might have guessed, pro-vaccine. I am amazingly grateful that my own children are growing up in an era in which it is highly unlikely that I will have to watch them die. One hundred years ago, it was ordinary to lose a child before they reached the age of five. Can you imagine? I don't even want to. That's me, in a nutshell. What about you?

Statistically speaking, I know that you are smart and educated people. You love your children as much as I love mine. You want what's best for them. You are not and do not want to be confused with the unhinged anti-vax bloggers who believe vaccines are part of a government conspiracy to intentionally injure children. […] You're normal and rational enough to know that while there is formaldehyde in some vaccines, it's also present in pears, which your children have probably enjoyed in both puréed and solid forms. And you are not, no matter what I say, going to vaccinate your son or daughter just because I think you should. […]

You understand that these are real and lethal illnesses. Roald Dahl was not lying when he described how his daughter Olivia, seemingly on the mend from measles, suddenly had trouble moving her hands and told him she felt "all sleepy." Hours later, she was dead.

Medicine has progressed in leaps and bounds since Olivia died in 1962, but even so, treatment for measles remains supportive — there are no medicines that can cure the virus itself, and the more severe cases will still result in death. […]

Do what you believe is best for your family, but if that means not vaccinating, I'm imploring you to keep it to yourself. Otherwise, you are putting your children at increased risk. Steer clear of private schools where immunization rates are so low that infections would spread right through the entire community like wildfire. Don't click on articles by anti-vax conspiracy theorists just so you can feel validated in your worldview.

My children don't enjoy getting jabbed, but they get their shots with a normal degree of grumbling. […] I hope enough people in your community feel the same as I do and will create a protective bubble around your own children, even if you're not willing to do so for theirs. Appreciate that gift for what it is. Don't poke the bubble, or it might pop. Instead, consider saying thank you.

Sincerely,

Meghan MacLean Weir, MD

Meghan MacLean Weir is a pediatrician and the author of Between Expectations: Lessons From a Pediatric Residency and the upcoming novel The Book of Essie.

www.lennyletter.com

QUESTÃO__16

Let's get a few things out of the way before we begin. (ℓ. 1)
The underlined expression can be replaced with the following verb without much change in its original meaning

(A) skip
(B) remove
(C) suggest
(D) consider

QUESTÃO__17

When children die of diseases, it's unconscionable. (ℓ. 7-8)
The underlined word implies that the situation is considered as

(A) impossible.
(B) improbable.
(C) unacceptable.
(D) unquestionable.

QUESTÃO__18

In the fourth paragraph, the author makes an important point to convince her audience.
She does so by

(A) presenting the disadvantages of not taking the vaccine.
(B) denying the risks of spreading diseases through vaccination.
(C) contesting the common sources of information against vaccines.
(D) showing how the government fails to provide effective vaccination.

QUESTÃO__19

Otherwise, you are putting your children at increased risk. (ℓ. 27)
The following fragment keeps a very similar semantic value to the underlined word:

(A) Not vaccinating is dangerous, but…
(B) If you don't vaccinate your children…
(C) Instead, you can vaccinate your kids …
(D) You must avoid vaccinating your kids because…

QUESTÃO__20

In the last paragraph, the author uses the metaphor of a bubble to conclude her text.
The bubble metaphor implies that

(A) parents who vaccinate their kids indirectly are protecting other children as well.
(B) the government must vaccinate kids whose parents are against this prevention.
(C) her kids got used to taking vaccines so nowadays they do not complain anymore.
(D) the community should forbid their kids to play with children who aren't vaccinated.

QUESTÃO 21

A média aritmética das idades dos 4 jogadores titulares de um time de futsal é igual a 20 anos. Se incluirmos o goleiro, a média das idades desses 5 jogadores será de 22 anos. A soma dos algarismos da idade do goleiro é igual a

(A) 6

(B) 5

(C) 4

(D) 3

QUESTÃO 22

A medida, em cm, da diagonal de um cubo é igual a **D**. Para calcularmos o volume desse cubo, em cm^3, basta multiplicar $\mathbf{D}^3$ por

(A) 1

(B) $\sqrt{3}$

(C) $\frac{\sqrt{3}}{3}$

(D) $\frac{\sqrt{3}}{9}$

QUESTÃO 23

> No Rio de Janeiro, o etanol é mais vantajoso que a gasolina pela primeira vez em quase 8 anos.
>
> Abastecer com o etanol é vantajoso economicamente quando o preço dele equivale a, no máximo, 70% do valor da gasolina, já que o etanol rende cerca de 30% menos.
>
> **uol.com.br, 15/08/2018.**

Atualmente, o preço médio do litro do etanol no Rio de Janeiro é de R$ 3,25, o que representa 65% do preço da gasolina. O valor médio, em reais, do litro da gasolina no Rio de Janeiro é igual a

(A) 5,36

(B) 5,00

(C) 4,85

(D) 3,90

QUESTÃO 24

Uma caixa d'água que está inicialmente vazia tem a capacidade de 1000 L. Essa caixa é abastecida durante 3,5 h até ficar completamente cheia. O gráfico a seguir, formado por dois segmentos de retas, representa o volume de água na caixa em função do tempo.

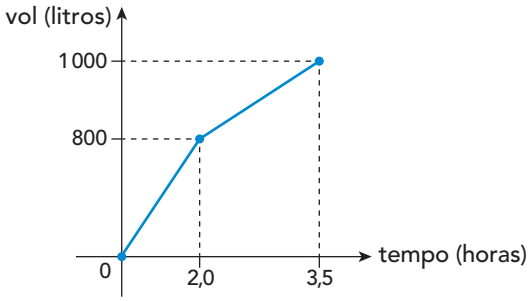

Após a redução do fluxo de água, o tempo necessário, em minutos, para que o volume de água atinja exatamente 900 L é igual a

(A) 35
(B) 45
(C) 55
(D) 65

QUESTÃO 25

O valor da expressão abaixo representa um número racional **n**.

$$\frac{3 \times (10)^0 + 3 \times (10)^{-1}}{1 \times (10)^0 + 6 \times (10)^{-1} + 5 \times (10)^{-2}}$$

O valor de **n** é igual a

(A) 0,02
(B) 0,20
(C) 2,00
(D) 2,20

QUESTÃO 26

As idades de um jovem, de sua mãe e de sua avó estão, nessa ordem, em progressão geométrica de razão $\frac{9}{4}$. Sabe-se que a avó possui 65 anos a mais que o neto. A idade, em anos, da mãe desse jovem é igual a

(A) 44
(B) 40
(C) 36
(D) 32

QUESTÃO 27

Durante uma aula de multiplicação, os alunos aprenderam que a ordem dos fatores não altera o produto. Se multiplicarmos os 5 fatores primos 2, 3, 3, 5 e 5, em qualquer ordem, obteremos sempre o resultado 450. O número máximo de sequências distintas que podemos formar com esses 5 fatores, para obtermos esse resultado, é igual a

(A) 120
(B) 60
(C) 40
(D) 30

QUESTÃO 28

A superfície da tampa de uma embalagem tem a forma de um hexágono regular ABCDEF. A figura abaixo representa essa tampa, cuja área é $600\sqrt{3}$ cm².

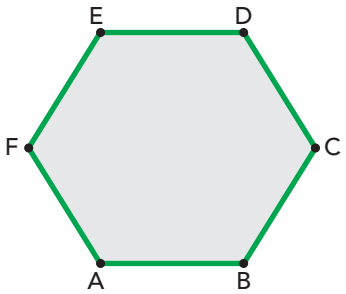

A razão $\frac{\overline{CF}}{\overline{AB}}$ é igual a

(A) 1,5
(B) 1,8
(C) 2,0
(D) 2,6

QUESTÃO 29

Um trem, inicialmente no ponto A, e um automóvel, inicialmente no ponto B, se deslocam em movimento uniforme até o cruzamento no ponto C. A velocidade do trem é de 60 km/h e as distâncias AC e BC são de 12 m e 20 m, respectivamente. Observe o esquema abaixo.

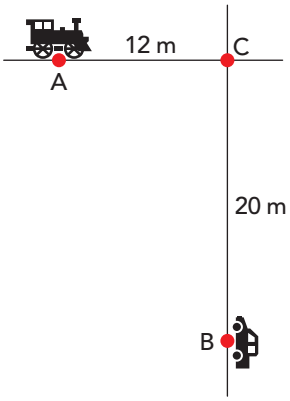

Dentre as alternativas abaixo, a que melhor representa a velocidade mínima necessária, em km/h, para que o automóvel passe pelo ponto C antes do trem, será

(A) 38
(B) 52
(C) 74
(D) 102

QUESTÃO 30

Metais são elementos químicos com tendência a se ionizarem perdendo elétrons. A energia de ionização é uma propriedade que varia em função da posição dos elementos químicos de um determinado grupo da tabela periódica.

Em relação ao grupo 12 da tabela periódica, o elemento de maior energia de ionização é

(A) Zn
(B) Cd
(C) Hg
(D) Cn

QUESTÃO 31

Em uma espécie de mamífero, a cor da pelagem é determinada por um par de genes autossômicos. Os homozigotos possuem pelos totalmente brancos ou totalmente avermelhados, enquanto os heterozigotos apresentam pelagem malhada, com algumas áreas cobertas por pelos brancos e outras por pelos vermelhos.

O fenômeno genético envolvido na cor da pelagem desses animais é denominado

(A) epistasia
(B) polialelia
(C) codominância
(D) dominância completa

QUESTÃO__32

O resveratrol é uma substância, presente nas uvas, que contribui para a redução dos níveis de colesterol no sangue. Esse composto apresenta a seguinte fórmula estrutural espacial:

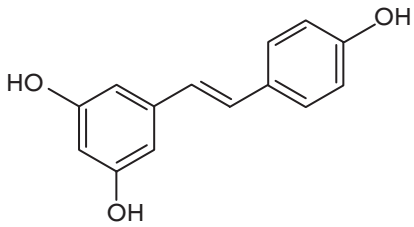

O tipo de isomeria espacial presente no resveratrol é denominada

(A) óptica
(B) funcional
(C) geométrica
(D) tautomérica

QUESTÃO__33

Pequenos roedores sobrevivem em desertos onde a disponibilidade de água é extremamente reduzida. Essa sobrevivência é possível devido a adaptações evolutivas desses seres vivos.

Uma das adaptações que esses animais apresentam é

(A) ureteres curtos
(B) alças néfricas longas
(C) suprarenais atrofiadas
(D) glomérulos desenvolvidos

QUESTÃO__34

Um objeto é abandonado em queda livre a uma altura de 8 m do solo, conforme representado no esquema abaixo.

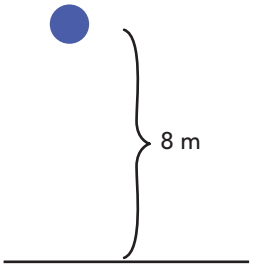

Em uma determinada altura h, a energia cinética do objeto corresponderá a 25% da energia potencial gravitacional inicial.

Nessa condição, o valor de h equivalerá a

(A) 7
(B) 6
(C) 5
(D) 4

QUESTÃO 35

Após a fecundação do óvulo pelo espermatozoide, o zigoto passa pelo processo de clivagem, aumentando de forma acelerada seu número de células. Apesar do aumento na quantidade de células, observa-se que o tamanho dessas células é menor a cada divisão, conforme ilustrado abaixo:

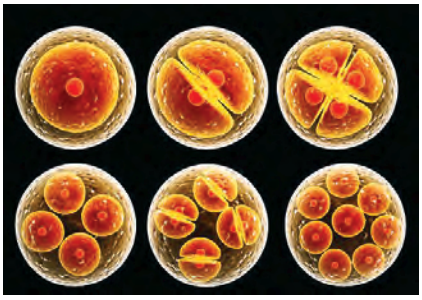

brasilescola.uol.com.br

A explicação para a diminuição do tamanho dessas células na clivagem é a

(A) alteração da taxa de transcrição na mitose

(B) inexistência das fases G1 e G2 do ciclo celular

(C) presença de cromossomos duplicados na fase S

(D) interrupção da síntese proteica das células embrionárias

QUESTÃO 36

Um fio metálico é aquecido, aumentando sua temperatura em 50 ^{0}C. Considere que o fio sofra apenas dilatação linear e que seu coeficiente de dilatação linear seja igual a $2{,}0 \times 10^{-5}$ $^0C^{-1}$.

O aumento percentual no comprimento do fio corresponderá a

(A) 1

(B) 0,1

(C) 0,01

(D) 0,001

QUESTÃO 37

A água oxigenada é uma solução aquosa de peróxido de hidrogênio, frequentemente utilizada em ferimentos. Essa substância, ao se decompor, libera gás oxigênio, conforme a equação química a seguir.

$$2\ H_2O_2\ (aq) \rightarrow 2\ H_2O\ (\ell) + O_2\ (g)$$

Em um experimento de decomposição dessa substância, observou-se que a concentração de uma solução de peróxido de hidrogênio decaiu de 0,05 para 0,01 mol/L em 5 minutos.

Nesse caso, a taxa média de formação de O_2, em mol/L.min, é igual a

(A) 0,002

(B) 0,004

(C) 0,006

(D) 0,008

QUESTÃO__38

Observe o circuito abaixo submetido à tensão U e composto por três lâmpadas.

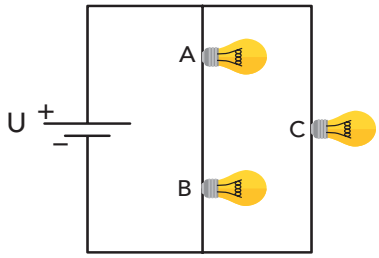

As resistências das lâmpadas A, B e C equivalem, respectivamente, a $\frac{3R}{2}$, $\frac{R}{2}$ e 4R.

Considere P_A a potência dissipada pela lâmpada A; P_B, pela lâmpada B; e P_C, pela lâmpada C. A relação entre as potências das lâmpadas que compõem o circuito corresponde a

(A) $P_A > P_C > P_B$

(B) $P_B > P_A > P_C$

(C) $P_C > P_B > P_A$

(D) $P_B > P_C > P_A$

QUESTÃO__39

A excreção é a eliminação dos resíduos tóxicos gerados por diferentes processos metabólicos no corpo dos seres vivos. Pesquisas indicam que os hábitos alimentares interferem na produção desses resíduos, aumentando ou reduzindo suas taxas.

Considerando a uréia como um desses resíduos, o aumento de suas taxas ocorre após a ingestão do seguinte nutriente:

(A) lipídeo

(B) vitamina

(C) proteína

(D) carboidrato

QUESTÃO__40

Em um laboratório, foram misturadas duas soluções aquosas de glicose. Uma das soluções apresentava volume igual a 800 mL e concentração 0,20 mol/L, e a outra, volume igual a 200 mL e concentração 0,50 mol/L.

A concentração de glicose da mistura resultante, em mol/L, equivale a

(A) 0,10

(B) 0,26

(C) 0,35

(D) 0,44

QUESTÃO__41

Uma das teorias da origem da vida na Terra sugere que o início ocorreu a partir de fontes hidrotermais marinhas, localizadas nas regiões mais profundas dos oceanos. Essas fontes liberam substâncias e energia necessárias para síntese da matéria orgânica a partir da oxidação de moléculas inorgânicas.

De acordo com a teoria, as primeiras formas de vida apresentam o seguinte tipo de metabolismo energético:

(A) aeróbico

(B) heterotrófico

(C) fotossintetizante

(D) quimiossintetizante

QUESTÃO__42

O bromato de potássio foi empregado na indústria de panificação para favorecer o crescimento da massa. Entretanto, devido ao seu potencial carcinogênico, o uso desse composto na alimentação foi proibido em vários países nas últimas décadas, incluindo o Brasil.

Esse composto apresenta a seguinte fórmula química:

(A) $KBrO_3$

(B) KBrO

(C) KBr_2

(D) KBr

QUESTÃO__43

Um bloco desliza em movimento retilíneo uniforme em uma superfície sem atrito com velocidade de 10 m/s. Entre os pontos P e Q, atravessa uma região de 3 m de comprimento, com atrito, como ilustra a figura abaixo.

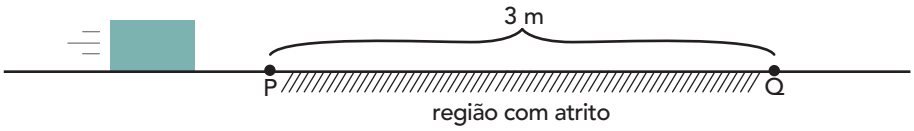

O coeficiente de atrito cinético entre a superfície da região com atrito e o bloco equivale a 0,6, e a aceleração da gravidade é igual a 10 m/s^2.

Ao sair da região com atrito, a velocidade do bloco, em m/s, é igual a

(A) 4

(B) 5

(C) 7

(D) 8

QUESTÃO__44

A maior parte dos países utiliza entre 20 e 30% dos seus territórios com a agricultura. Nos países da União Europeia, o índice varia entre 45 e 65% e, nos Estados Unidos, aproxima-se de 20%. A China enquadra-se nessas médias. A liderança, nesse quesito, fica por conta da Índia, que ocupa pouco mais de 60% do seu território com cultivos.

Já no Brasil, os cultivos ocupam fatia inferior a 8% do território. Mesmo assim, segundo cálculos de especialistas, o agronegócio brasileiro alimenta, com seu leque variado de produtos, cerca de 1,5 bilhão de pessoas diariamente.

ÁREAS DEDICADAS À LAVOURA
(principais países, em milhões de hectares)

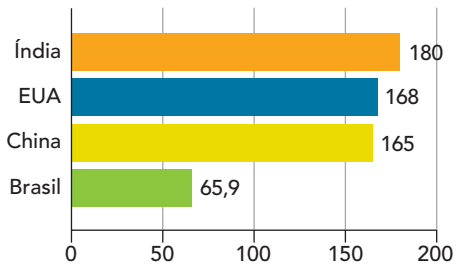

PORCENTAGEM DE ÁREAS TERRESTRES PROTEGIDAS
(em países com mais de 2,5 milhões de km²)

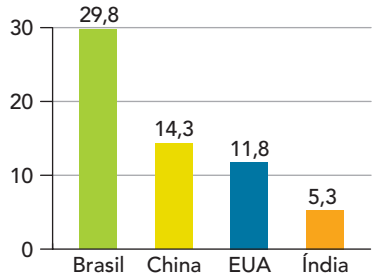

Jornal Mundo, 03/2010

A partir das informações do texto e dos gráficos, há reconhecimento de que a preservação ambiental é favorecida pela seguinte característica nacional:

(A) regime hídrico regular

(B) superfície fértil pequena

(C) produtividade rural elevada

(D) população absoluta reduzida

QUESTÃO__45

A reportagem atesta uma mudança socioeconômica na segunda maior economia do mundo.

> SALÁRIO MÉDIO DA INDÚSTRIA DA CHINA SUPERA O DO BRASIL E O DO MÉXICO
>
> O salário médio dos trabalhadores do setor industrial na China já ultrapassou o de países como Brasil e México e está se aproximando da renda média da força de trabalho na Grécia e em Portugal.
>
> Considerando os trabalhadores chineses como um todo, a renda por hora é superior à de todos os grandes países da América Latina, com exceção do Chile. Em relação aos países menos desenvolvidos da zona do euro, o chinês recebe 70% do salário médio. O salário médio por hora na indústria chinesa triplicou entre 2005 e 2016, para US$ 3,60, segundo o Euromonitor.
>
> **Adaptado de Jornal Valor Econômico, 26/02/2017**

Considerando o papel da China nas estratégias produtivas das corporações, um risco dessa mudança, em médio prazo, é o de afetar o desempenho econômico nacional, devido à redução de

(A) emprego no setor secundário

(B) sindicalização nas empresas locais

(C) investimento na qualificação laboral

(D) automação nas linhas de montagem

QUESTÃO__46

Diversas foram as razões para o incêndio que consumiu o prédio e o acervo de um dos mais importantes museus e centro de pesquisa pública no país, o Museu Nacional, no Rio de Janeiro. Analise o gráfico a seguir:

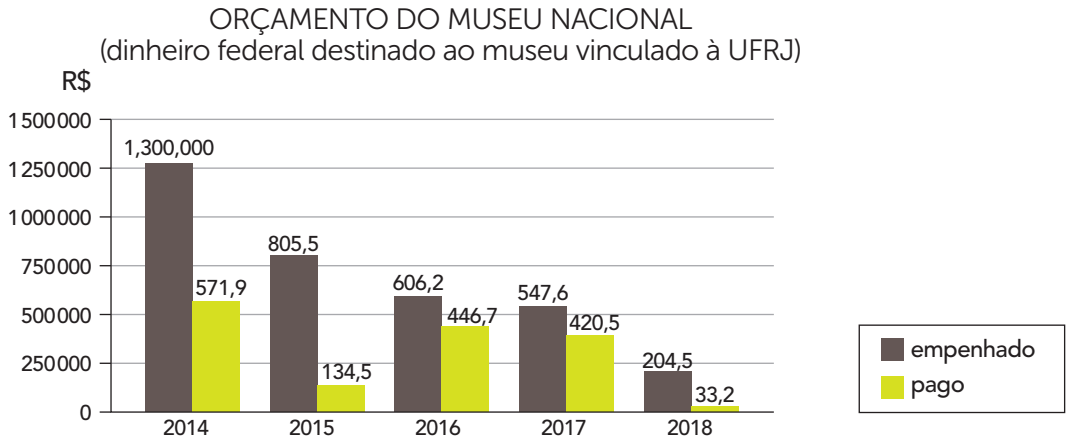

https://aosfatos.org/noticias/relatos-de-falta-de-verba-e-abandono-do-museu-nacional-remontam-decada-de-1950/

A relação entre os recursos empenhados e pagos é explicada pela adoção da política econômica conhecida como

(A) ajuste fiscal

(B) arrocho salarial

(C) planificação estatal

(D) descentralização financeira

QUESTÃO__47

HINDUS CRIARAM COMISSÃO PARA REESCREVER A HISTÓRIA

O Governo do primeiro-ministro hindu Narendra Modi tinha nomeado discretamente esta comissão de 14 especialistas – 12 historiadores e dois burocratas – seis meses antes. Atas das reuniões e entrevistas com membros do comitê de peritos demonstram os seus objetivos: usar evidências científicas, como achados arqueológicos e DNA para tentar provar que a população hindu atual descende diretamente dos primeiros habitantes do território, há muitos milhares de anos, e defender a tese de que as antigas escrituras hindus não descrevem lendas, mas sim fatos.

Ao fazê-lo, desafiam a narrativa que tem dominado desde o tempo do domínio britânico, a de que a Índia moderna é um mosaico resultante de migrações, de invasões e de conversões. Essa visão baseia-se em fatos demográficos: apesar de a maioria dos indianos ser hindu, há cerca de 240 milhões de indianos muçulmanos ou de outras religiões – ou seja, um quinto da população.

RUPAM JAIN e TOM LASSETER
Adaptado de www.publico.pt, 18/03/2018

As duas narrativas mencionadas na reportagem são a expressão de perspectivas históricas bastante distintas, marcadas pela oposição entre:

(A) Misticismo – Ateísmo

(B) Materialismo – Idealismo

(C) Nacionalismo – Internacionalismo

(D) Etnocentrismo – Multiculturalismo

QUESTÃO__48

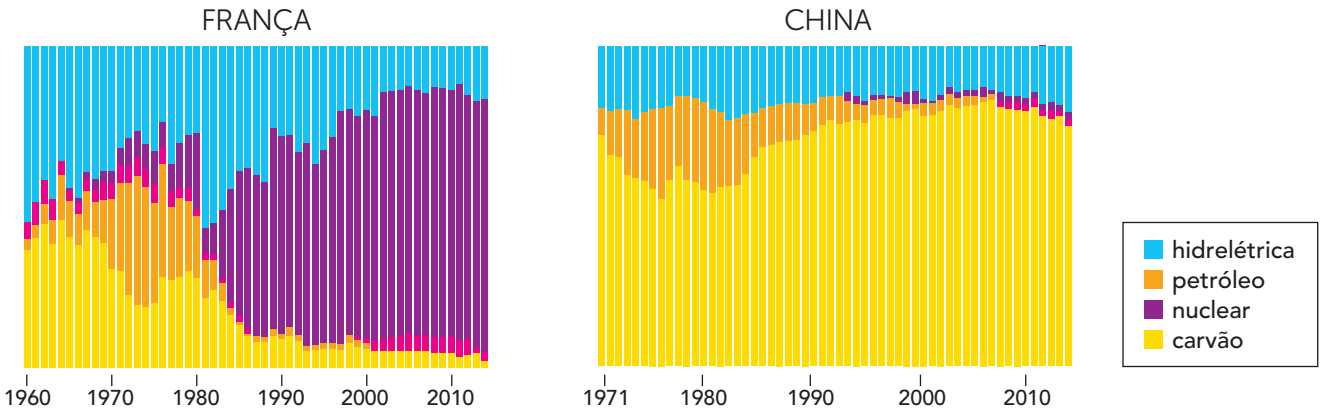

www.nexojornal.com.br, 27/03/2018

A composição da matriz elétrica nacional está vinculada a fatores muito diversificados.

As explicações para as fontes energéticas priorizadas pela França e pela China são, respectivamente:

(A) domínio da tecnologia utilizada – abundância do recurso natural

(B) custo de geração reduzido – variedade de combustíveis derivados

(C) ausência de restrição ambiental – incentivo da ação governamental

(D) disponibilidade do recurso renovável – qualidade da rede de transporte

QUESTÃO__49

COMO ESCRAVOS ENTRAVAM NA JUSTIÇA E FAZIAM POUPANÇA PARA LUTAR PELA LIBERDADE

Em 1883, Rita entrou com uma ação na Justiça da Imperial Cidade de São Paulo contra o Tenente Julio Nunes Ramalho. Poderia ser mais um processo qualquer, não fosse um fato notável: Rita não era considerada cidadã pela lei brasileira. Era escrava. Já o Tenente Ramalho era seu proprietário. O objeto do caso era o interesse de Rita de comprar sua liberdade.

O Brasil estava mudando. Em 1871, foi aprovada a Lei do Ventre Livre, que estabeleceu a liberdade para filhos de mulheres escravizadas nascidos dali em diante - como o menino Benedito, a quem Rita deu à luz três anos após a lei.

Além disso, a Lei do Ventre Livre deu às pessoas escravizadas o direito de juntar dinheiro - fosse fruto de doações, do próprio trabalho ou de economias - e, com ele, comprar sua própria alforria, independentemente da autorização do seu proprietário.

https://www.bbc.com/portuguese/geral-43078878?ocid=socialflow_facebook

A partir do caso narrado, a lei de 1871 promoveu a seguinte mudança na sociedade escravista:

(A) redução da interferência estatal

(B) limitação da autoridade senhorial

(C) fragmentação do movimento abolicionista

(D) desmobilização da comunidade quilombola

QUESTÃO__50

Analise o gráfico:

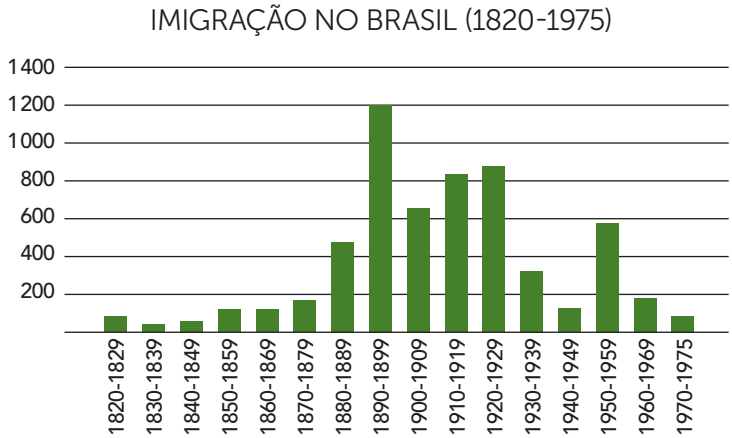

nexojornal.com.br, 06/11/2018.

Os deslocamentos populacionais de trabalhadores estão associados a fatores de repulsão nas áreas de origem e a fatores de atração nas de destino, os quais mudam consideravelmente ao longo do tempo.

Um fator de atração que explica a quantidade de imigrantes entrando no Brasil, no período de 1890 - 1929, e uma justificativa para o declínio registrado no período 1930 - 1939 estão apresentados, respectivamente, em:

(A) implantação da proteção social e deflagração de conflito bélico regional

(B) avanço da construção civil e crescimento do sentimento xenófobo extremista

(C) interiorização da rede de transporte e declínio da atividade industrial nacional

(D) expansão da atividade agroexportadora e aprovação de legislação migratória restritiva

QUESTÃO__51

Alguém do Rio de Janeiro
Deu dinheiro e remeteu
Porém não sei o que houve
Que cá não apareceu
O dinheiro é tão sabido
Que quis ficar escondido
Nos cofres dos potentados
Ignora-se esse meio
Eu penso que ele achou feio
Os bolsos dos flagelados

Citado por SALIBA, Elias. "Cultura: as apostas da república" In: SCHWARCZ, Lilia Moritz. (Org.). História do Brasil Nação: a abertura para o mundo (1889-1930). 1ed. Rio de Janeiro: Objetiva, 2012.

O poeta Leandro Gomes de Barros, em 1972, destacou o tratamento conferido pelos poderes públicos aos efeitos da seca nos estados da atual região Nordeste.

No trecho do cordel, esse tratamento era caracterizado por

(A) indiferença e por incitação ao cangaço

(B) truculência e por estímulo ao conformismo

(C) desamparo e por conivência com a corrupção

(D) abandono e por cumplicidade com o clientelismo

QUESTÃO__52

Correio da Manhã, 18/08/1964.

Na charge, Augusto Bandeira ironiza uma característica do regime vigente no país, em 1964.
Essa característica é o

(A) estatismo
(B) autoritarismo
(C) anticomunismo
(D) intervencionismo

QUESTÃO__53

PROCURA POR ESPERMA AMERICANO AUMENTA NO BRASIL

Cabelo loiro, olhos claros, sardas no rosto. Essa descrição certamente não é o padrão da população brasileira. Essas são as características do doador 9601 do banco de esperma de Seattle, um dos mais requisitados por mulheres ricas brasileiras, que estão importando DNA de homens jovens dos Estados Unidos em quantidades sem precedentes.

Fredrik Andreasson, CEO do banco de esperma, afirma que as preferências dos compradores brasileiros são as mesmas do mercado global. "A grande maioria do que temos e do que vendemos são doadores caucasianos, loiros e de olhos azuis", diz.

https://epocanegocios.globo.com/Brasil/noticia/2018/03/procura-por-esperma-americano-aumenta-no-brasil.html

A preferência descrita na reportagem de 2018 se remete à prática adotada no Brasil, no século XIX, denominada

(A) eugenia
(B) evolucionismo
(C) suprematismo
(D) branqueamento

QUESTÃO 54

Nem sempre as representações do espaço precisam seguir as proporções da escala cartográfica. Nas anamorfoses, a área de cada território é representada, de acordo com a grandeza de uma variável e não de acordo com a sua superfície em quilômetros quadrados.

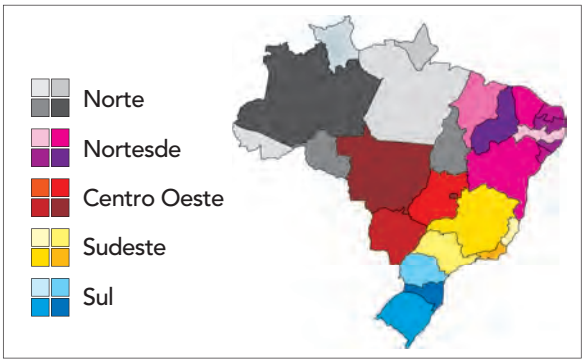

Considerando a legenda acima, a anamorfose que representa, de forma adequada, a proporção de habitantes do Brasil em cada macrorregião é

(A)

(B)

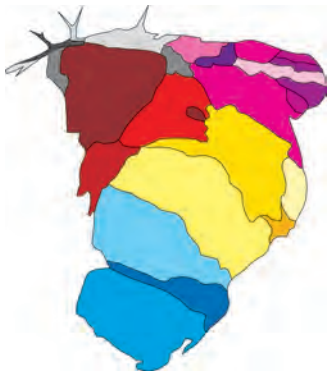

(C)

(D)

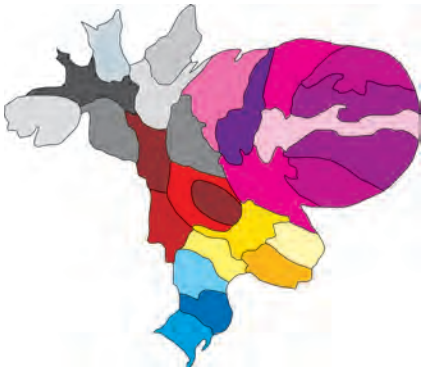

QUESTÃO__55



https://www.al.sp.gov.br/alesp/banco-imagens/detalhe/?id=165872

Na charge, Henfil (1944-1988) representa algumas das expectativas com a Assembleia Constituinte eleita em 1986. Uma dessas expectativas era a

(A) ampliação da abertura econômica
(B) coletivização da atividade produtiva
(C) consolidação da transição democrática
(D) radicalização da solidariedade popular

QUESTÃO__56

MONTADORAS TENTAM SE REINVENTAR PARA ENFRENTAR QUEDA NA VENDA DE CARROS NA ALEMANHA

Este é um momento de reavaliação para um setor que contou com três coisas desde que o automóvel foi inventado na Alemanha, há mais de um século: os carros funcionavam com motores a combustão; as pessoas queriam ter um carro; e também queriam que o veículo fosse dirigido unicamente por elas.

Na era do compartilhamento, com frotas movidas a bateria e carros autônomos chegando, as fabricantes precisam se reinventar como empresas de mobilidade para sobreviver.

folha.uol.com.br, 09/2018.

O mercado de venda de carros na Alemanha sofreu alterações em suas características principais, o que vem forçando as montadoras a buscarem novas estratégias.

Duas causas para essas alterações são:

(A) redução da poluição urbana e combate ao egocentrismo
(B) crescimento da preocupação ambiental e crítica ao consumismo
(C) agravamento da crise energética e questionamento ao capitalismo
(D) estagnação do desenvolvimento tecnológico e apologia ao individualismo

QUESTÃO 57

Colocar a questão da imigração para dentro de campo pode ser um erro, na avaliação do correspondente do jornal L'Équipe no Brasil: "Vinte anos depois está começando a surgir de novo esse conceito. Os políticos vão querer usar, claro, essa onda para dizer que está tudo bem. Mas nada mudou 20 anos depois".

Misturar o time nacional com a questão dos imigrantes é corriqueiro na França. Já houve polêmica entre o ex-presidente Nicolas Sarkozy e o lateral Lilian Thuram. Na época, Sarkozy era ministro do interior e usou uma palavra pejorativa, algo perto de "marginal ou bandido", para definir pessoas da periferia. Thuram, que é de uma delas, rebateu em uma coletiva de imprensa na seleção. E também há o caso de Karim Benzema, atacante do Real Madrid, que foi à Copa de 2014 e está ausente de 2018, segundo ele, por pressão da direita racista. Benzema tem origem argelina.

Adaptado de bbc.com.

Nas análises sobre a seleção campeã da Copa do Mundo de 2018, está presente um dilema entre a ressignificação da identidade nacional e a situação de imigrantes e de seus descendentes na sociedade francesa.

Considerando a reportagem, esse dilema está indicado na seguinte oposição:

(A) redução da xenofobia × contenção do terrorismo

(B) acolhida de refugiados × avanço do desemprego

(C) afirmação do arianismo × crescimento da criminalidade

(D) defesa do multiculturalismo × dificuldade de integração

QUESTÃO 58

A três dias de estrearem na Copa do Mundo, os jogadores do Irã podem ficar sem chuteiras. "Como uma empresa norte-americana, a Nike não pode fornecer chuteiras aos jogadores da seleção iraniana neste momento", afirmou a companhia em um comunicado oficial.

A decisão pegou jogadores e comissão técnica de surpresa, já que, na Copa do Mundo de 2014, as imposições do governo dos EUA não impediram a empresa de fornecer os materiais para a equipe.

Adaptado de Folha de S. Paulo, 12/06/2018.

O governo dos EUA tem recentemente modificado suas ações diante de diversos temas de política internacional.

A partir da notícia, a estratégia adotada e o objetivo declarado pelos EUA diante do Irã estão indicados, respectivamente, como:

(A) ação militar e privatização da produção petrolífera

(B) sanções comerciais e interrupção do programa nuclear

(C) boicote esportivo e retração do fundamentalismo islâmico

(D) barreiras alfandegárias e contenção do terrorismo cibernético

QUESTÃO__59

A imagem abaixo foi retirada da revista norte americana *MAD*, após a visita de Donald Trump ao Muro das Lamentações, em maio de 2017.

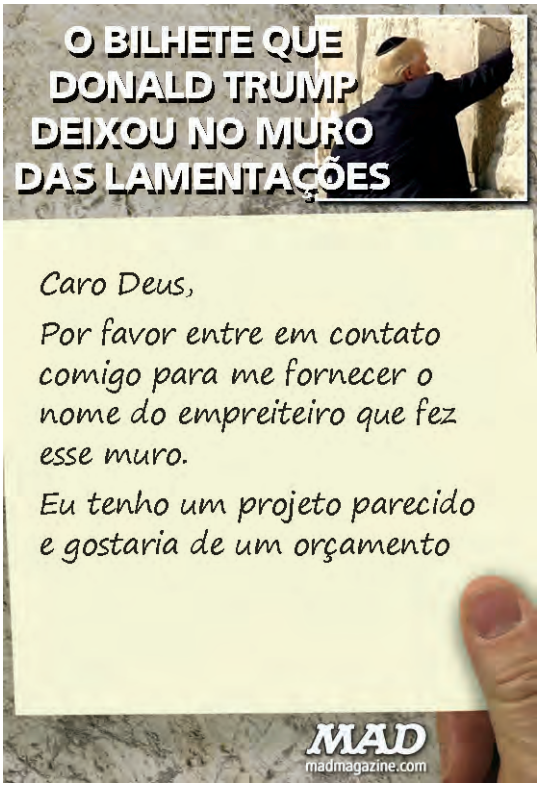

Adaptado de Revista MAD. 10/2017.

A visita do presidente estadunidense e a publicação da revista *MAD* expõem duas ações políticas adotadas pelo presidente dos EUA, objetivando apoio dos seguintes segmentos da sociedade estadunidense:

(A) ativistas laicos e agricultores familiares

(B) clérigos liberais e empresários da indústria

(C) direita religiosa e trabalhadores desempregados

(D) comunidade agnóstica e proprietários de construtoras

QUESTÃO__60

MAPA DA CIDADE POR RENDA

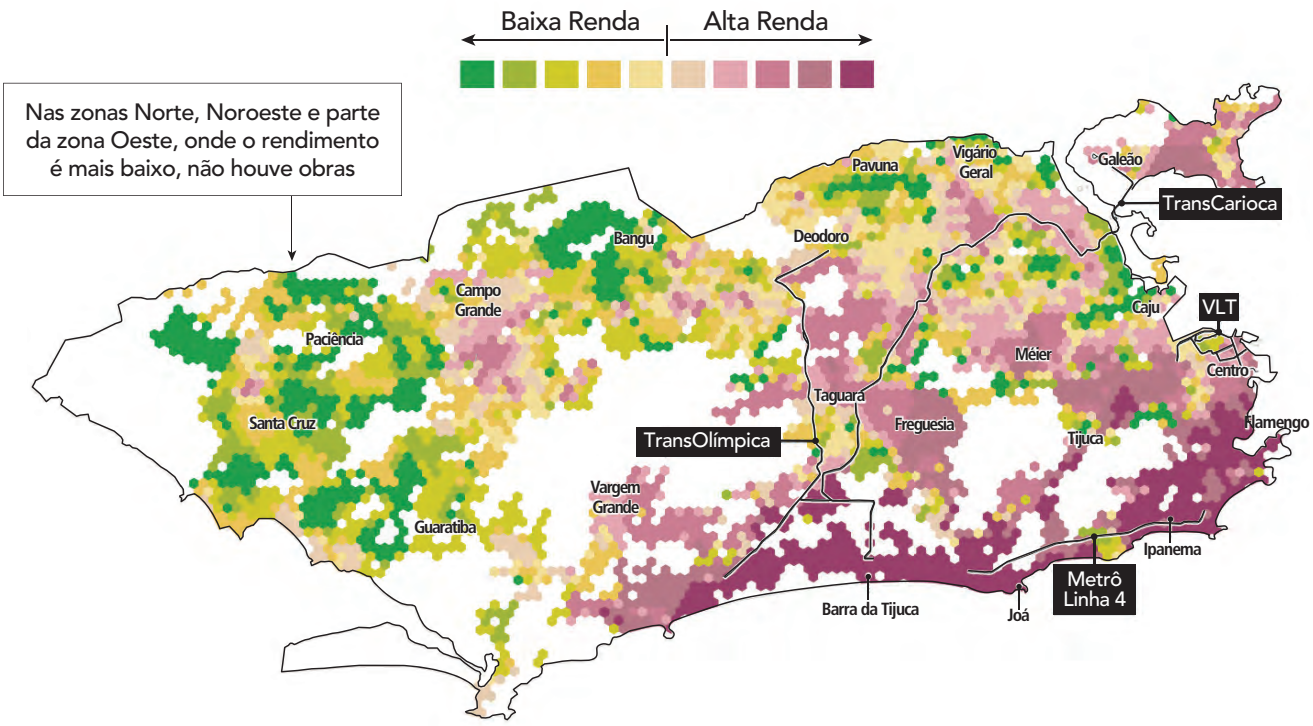

O Globo, 6/11/2017.

No mapa, estão assinaladas as quatro últimas grandes obras de mobilidade urbana implantadas no Rio de Janeiro. Analisando-as, identifica-se a seguinte consequência para a dinâmica territorial carioca:

(A) reforço do padrão de segregação espacial

(B) redirecionamento do vetor de expansão suburbana

(C) enfraquecimento da integração da região metropolitana

(D) interrupção da tendência de desconcentração comercial

CLASSIFICAÇÃO PERIÓDICA DOS ELEMENTOS

(Adaptado da IUPAC - 2018)

1	2	3	4	5	6	7	8	9	10	11	12	13	14	15	16	17	18
I A																	VIII A
1 H 2,1 1	II A											III A	IV A	V A	VI A	VII A	2 He 4
3 Li 1,0 7	4 Be 1,5 9											5 B 2,0 11	6 C 2,5 12	7 N 3,0 14	8 O 3,5 16	9 F 4,0 19	10 Ne 20
11 Na 0,9 23	12 Mg 1,2 24	III B	IV B	V B	VI B	VII B	VIII B			I B	II B	13 Al 1,5 27	14 Si 1,8 28	15 P 2,1 31	16 S 2,5 32	17 Cl 3,0 35,5	18 Ar 40
19 K 0,8 39	20 Ca 1,0 40	21 Sc 1,3 45	22 Ti 1,4 48	23 V 1,6 51	24 Cr 1,6 52	25 Mn 1,5 55	26 Fe 1,8 56	27 Co 1,8 59	28 Ni 1,8 58,5	29 Cu 1,9 63,5	30 Zn 1,6 65,5	31 Ga 1,6 70	32 Ge 1,8 72,5	33 As 2,0 75	34 Se 2,4 79	35 Br 2,8 80	36 Kr 84
37 Rb 0,8 85,5	38 Sr 1,0 87,5	39 Y 1,2 89	40 Zr 1,4 91	41 Nb 1,6 93	42 Mo 1,6 96	43 Tc 1,9 (98)	44 Ru 2,2 101	45 Rh 2,2 103	46 Pd 2,2 106,5	47 Ag 1,9 108	48 Cd 1,7 112,5	49 In 1,7 115	50 Sn 1,8 119	51 Sb 1,9 122	52 Te 2,1 127,5	53 I 2,5 127	54 Xe 131
55 Cs 0,7 133	56 Ba 0,9 137	57-71 lantanídeos	72 Hf 1,3 178,5	73 Ta 1,5 181	74 W 1,7 184	75 Re 1,9 186	76 Os 2,2 190	77 Ir 2,2 192	78 Pt 2,2 195	79 Au 2,4 197	80 Hg 1,9 200,5	81 Tl 1,8 204	82 Pb 1,8 207	83 Bi 1,9 209	84 Po 2,0 (209)	85 At 2,2 (210)	86 Rn (222)
87 Fr 0,7 (223)	88 Ra 0,9 (226)	89-103 actinídeos	104 Rf (261)	105 Db 262	106 Sg (263)	107 Bh (262)	108 Hs (265)	109 Mt (268)	110 Ds (281)	111 Rg (280)	112 Cn (285)	113 Uut (286)	114 Fl (289)	115 Uup (289)	116 Lv (293)	117 Ts (294)	118 Og (294)

lantanídeos	57 La 1,1 139	58 Ce 1,1 140	59 Pr 1,1 141	60 Nd 1,1 144	61 Pm 1,1 (145)	62 Sm 1,2 150	63 Eu 1,2 152	64 Gd 1,2 157	65 Tb 1,2 159	66 Dy 1,2 162,5	67 Ho 1,2 165	68 Er 1,2 167	69 Tm 1,2 169	70 Yb 1,2 173	71 Lu 1,3 175
actinídeos	89 Ac 1,1 227	90 Th 1,3 232	91 Pa 1,5 231	92 U 1,7 238	93 Np 1,3 237	94 Pu 1,3 (244)	95 Am 1,3 (243)	96 Cm 1,3 (247)	97 Bk 1,3 (247)	98 Cf 1,3 (251)	99 Es 1,3 (252)	100 Fm 1,3 (257)	101 Md 1,3 (258)	102 No 1,3 (259)	103 Lr 1,3 (262)

NÚMERO ATÔMICO | ELETRONEGATIVIDADE

SÍMBOLO

MASSA ATÔMICA APROXIMADA